5. trinn
høsten

Lærerveiledning regneferdigheter

Bekymringsgrense: 19

1. Hvor mye? Sett ring rundt riktig svar.

104 kr	113 kr	117 kr	171 kr

176 kr	226 kr	626 kr	636 kr

2. Skriv tallene med siffer.

To hundre og førtifire = **244**

Tre tusen, fire hundre og atten = **3418**

Fire hundre og tre = **403**

3. Rund av til nærmeste hundrer.

130 ≈ **100**	150 ≈ **200**
349 ≈ **300**	1852 ≈ **1900**

4. Rund av til nærmeste tidel. Sett kryss på riktig svar.

25,86 ≈	25,86	25,87	25,8	~~26,9~~
70,47 ≈	~~70,5~~	70,47	70,4	70,48
16,75 ≈	16,7	~~16,8~~	16,76	16,75

5. Tegn strek ned på riktig sted på tallinja.

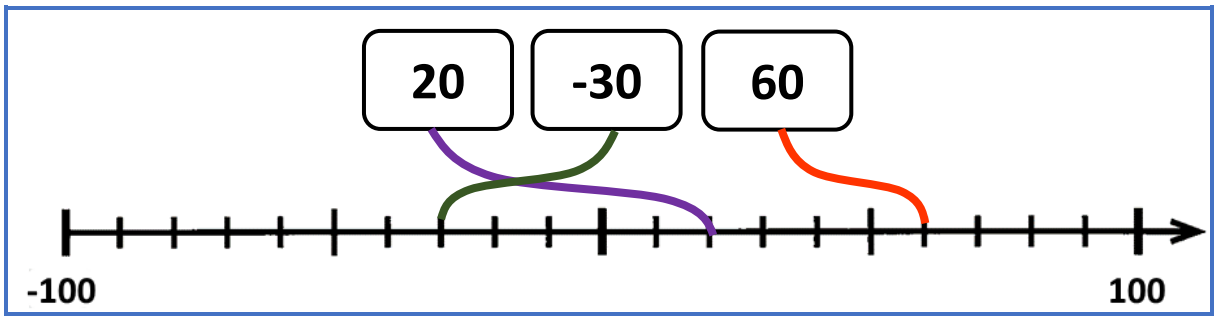

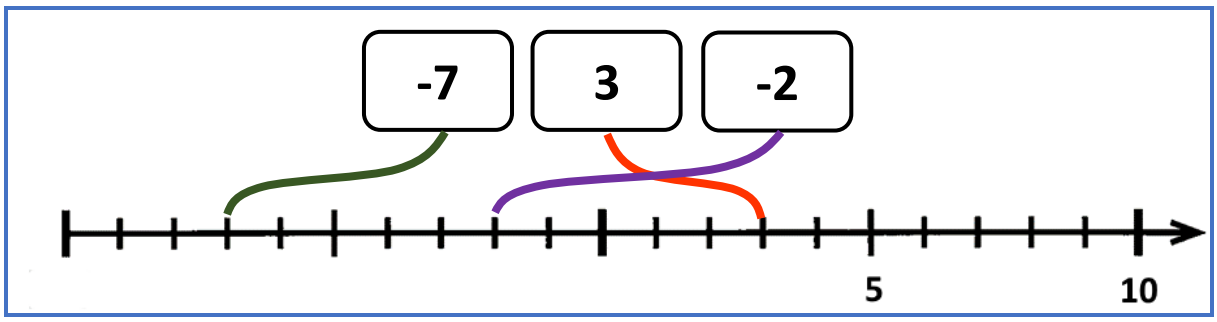

6. Hvilket tall peker pila på?

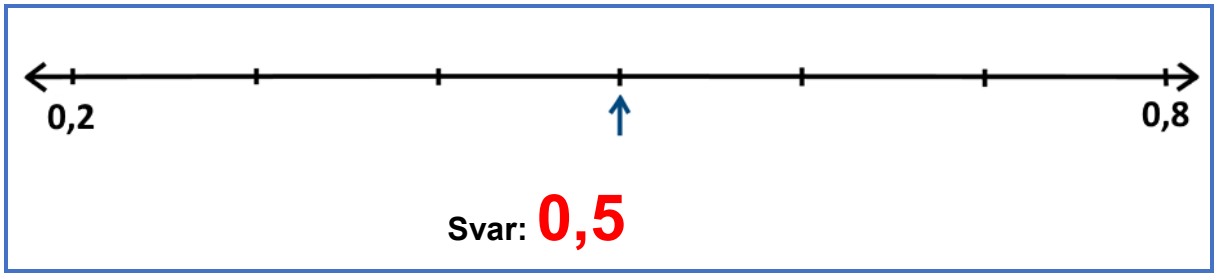

Svar: 0,5

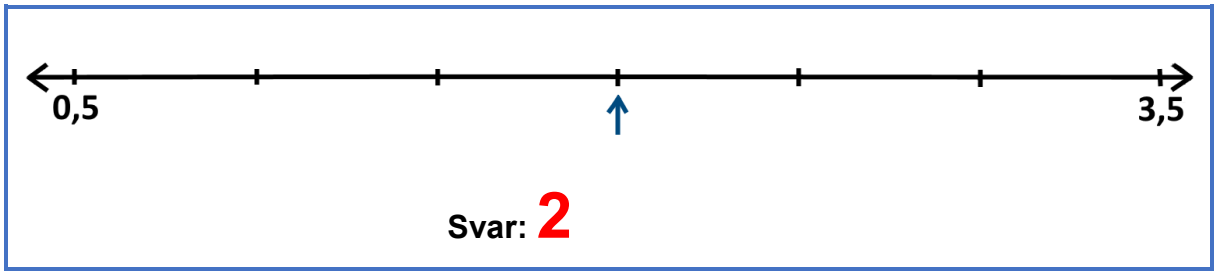

Svar: 2

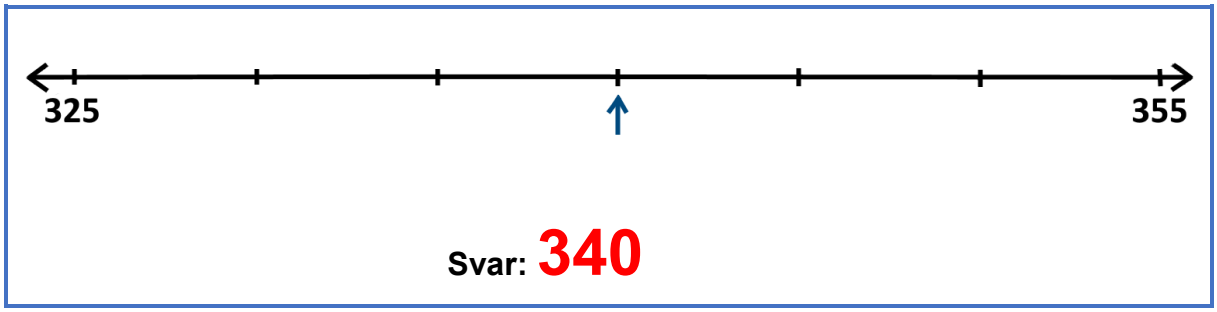

Svar: 340

7. Regn ut

12 + 5 = **17**	19 + 12 = **31**
375 + 23 = **398**	379 + 59 = **438**
34 – 6 = **28**	340 – 27 = **313**
8 – 15 = **-7**	220 – 132 = **88**
6 • 4 = **24**	9 • 6 = **54**
12 • 8 = **96**	11 • 3 = **33**
15 : 5 = **3**	100 : 25 = **4**
36 : 3 = **12**	2 : 4 = **0,5**

8. Regn ut og skriv svaret

Langbakken skole arrangerte friidrettsdag. Espen og Noah hoppet stille lengde.
Espen hoppet 1 m og 20 cm, og Noah hoppet 95 cm.

Hvor mange centimeter lengre hoppet Espen enn Noah?

Svar: **25 cm**

En lastebileier har seks store lastebiler.
Her lastebil har 12 hjul.

Hvor mange hjul er det til sammen på lastebilene?

Svar: **72 hjul**

9. Skriv som liter

20 dl = **2** *l*	4 dl = **0,4** *l*	105 dl = **10,5** *l*

10. Hvilken speiling er riktig? Sett kryss på riktig speiling.

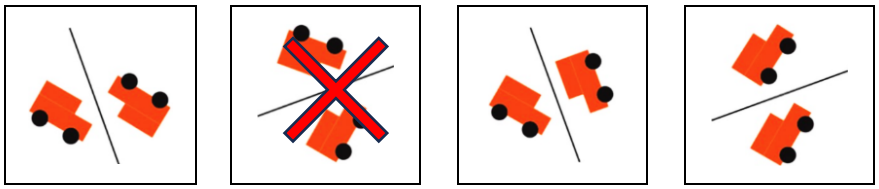

11. Hvilken sirkel er ⅓ fargelagt? Sett kryss på riktig sirkel.

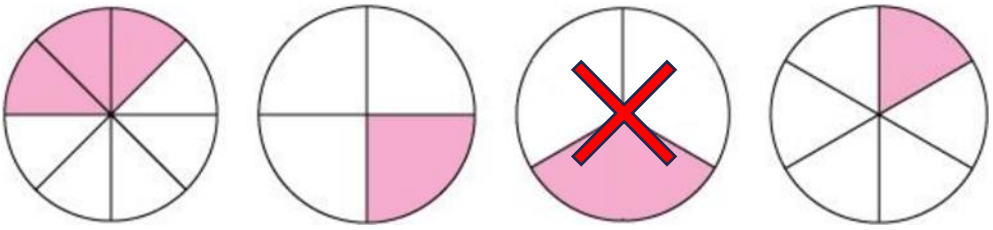

12. Hva heter figurene?

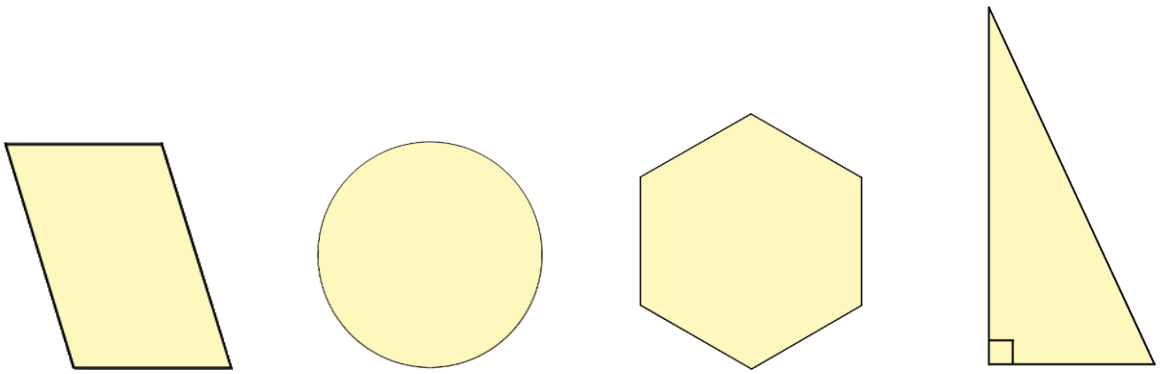

Parallellogram	**Sirkel**	**Sekskant**	**Trekant** (Rettvinklet trekant)

13. Lag et rektangel med areal på 12 cm^2

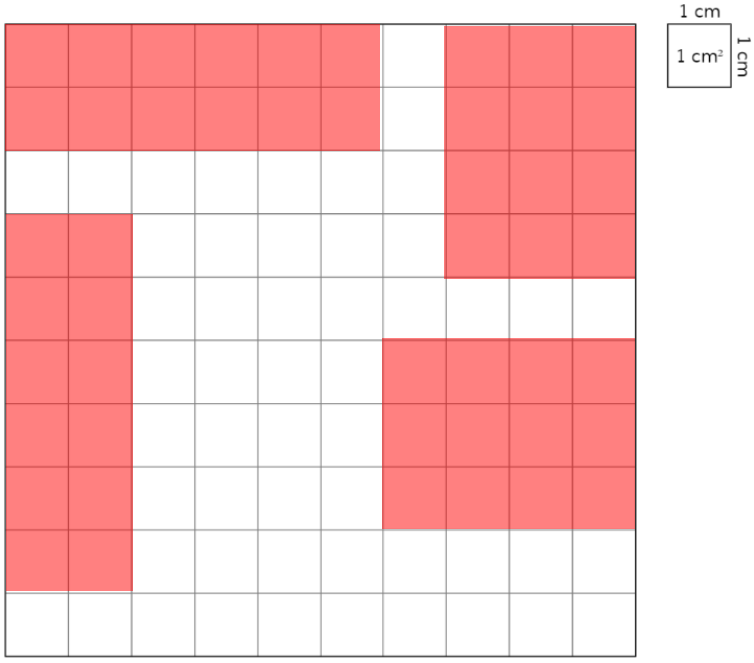

14. Skriv to klokkeslett til hver klokke.

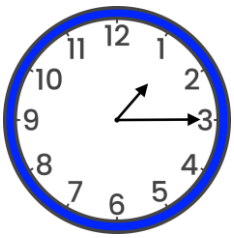

01.15

13.15

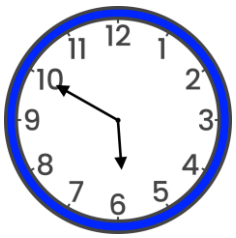

05.50

17.50

15. Regn ut

	1		
	2	8	7
+		6	0
=	**3**	**4**	**7**

	5	9	7
-	2	7	6
=	**3**	**2**	**1**

	4	8	5	7
-		8	3	5
=	**4**	**0**	**2**	**2**

16. Løs oppgaven

Fire jenter noterte hvor mange sider de hadde lest hver dag i fem dager. Diagrammet viser resultatet.

Hvem hadde lest flest sider på tirsdag?

Svar: **Tuva**

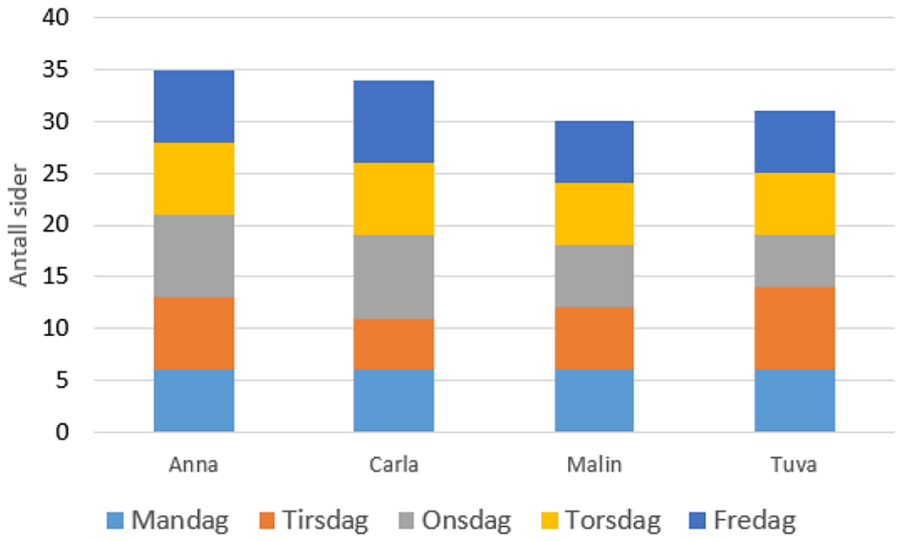

17. Løs oppgaven

Petter og familien besøker Frammuseet. I familien hans er det to voksne og tre barn. De ser at det blir billigere å kjøpe en familiebillett enn å kjøpe enkeltbilletter til voksne og barn.

Besøkende	Pris
Voksne	120 kr
Barn og studenter	50 kr
Pensjonister	90 kr
Familier (2 voksne og 3 barn)	240 kr
Skoleelever i følge med en lærer	Gratis

Hvor mye billigere blir en familiebillett?

Til utregning:

Svar: **150 kr**

Elev: _____

Oppg.nr.	Tema	Resultat	Av totalt
1	Tall/mengde		2
2	Tall med bokstaver		3
3	Avrunding		4
4	Avrunding		3
5	Tallinje		6
6	Tallinje		3
7	De fire regneartene		16
8	Tekstoppgave		2
9	Omgjøring - liter		3
10	Speiling		1
11	Brøk		1
12	Geometriske figurer		4
13	Areal		1
14	Klokka		4
15	Utregning		3
16	Diagram		1
17	Tabell		1
			58

Sjekkliste etter prøven

✓ se nærmere på resultatene til elever som skårer under eller like over bekymringsgrensen

✓ vurdere hva de klarer / ikke klarer på de enkelte prøvene/oppgavene

✓ se resultatene i sammenheng med annen informasjon om eleven, blant annet observasjoner gjort under prøven

✓ sørge for at elevene og foreldrene til elever som trenger ekstra oppfølging, får tilbakemelding om resultatene og informasjon om videre oppfølging

Spørsmål til refleksjon og diskusjon

✓ Er resultatet som forventet?

✓ Ser vi mønstre/tendenser i resultatene på trinnet?

✓ Har vi annen informasjon som bekrefter eller avkrefter resultatene fra kartleggingsprøven?

✓ Viser resultatene fra kartleggingsprøven at det er behov for ytterligere kartlegging?

✓ Hvilke konsekvenser får resultatene for trinnets videre arbeid med regning i alle fag?

✓ Hva kan vi gjøre for å forbedre de resultatene vi ikke er fornøyde med?

✓ Hvilke tiltak kan vi iverksette overfor elever under og like over bekymringsgrensen?