5. trinn
våren

Lærerveiledning regneferdigheter

Bekymringsgrense: 24 poeng

1. Hvor mye? Sett ring rundt riktig svar.

104 kr	113 kr	117 kr	171 kr

176 kr	226 kr	626 kr	636 kr

2. Skriv som ett tall med tallsymboler

Sekstitre = **63**

Seks hundrere, ni tiere og fire enere = **694**

Tre tusen og førtito = **3042**

Fjorten hundrere og tre tiere = **1430**

3. Rund av til nærmeste hundrer.

240 ≈ **200**	150 ≈ **200**
349 ≈ **300**	1952 ≈ **2000**

4. Fortsett tallrekkene

42	38	34	**30**	**26**	**22**
14	21	28	**35**	**42**	**49**
2,5	2,9	3,3	**3,7**	**4,1**	**4,5**

5. **Tegn strek ned på riktig sted på tallinja.**

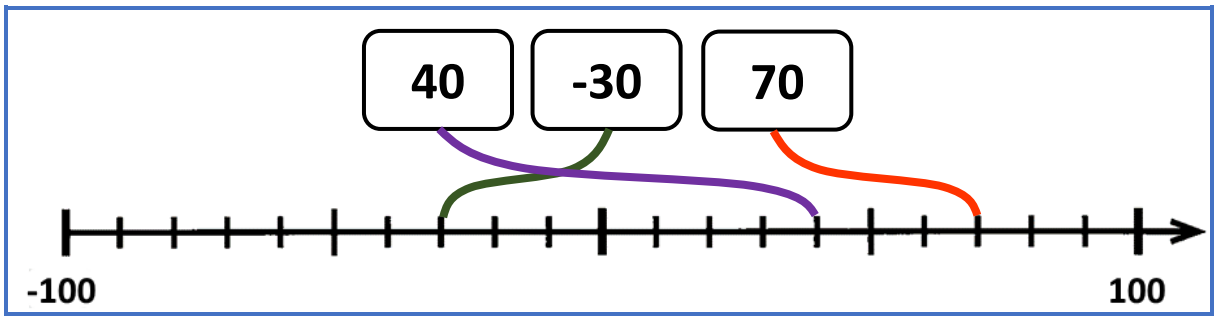

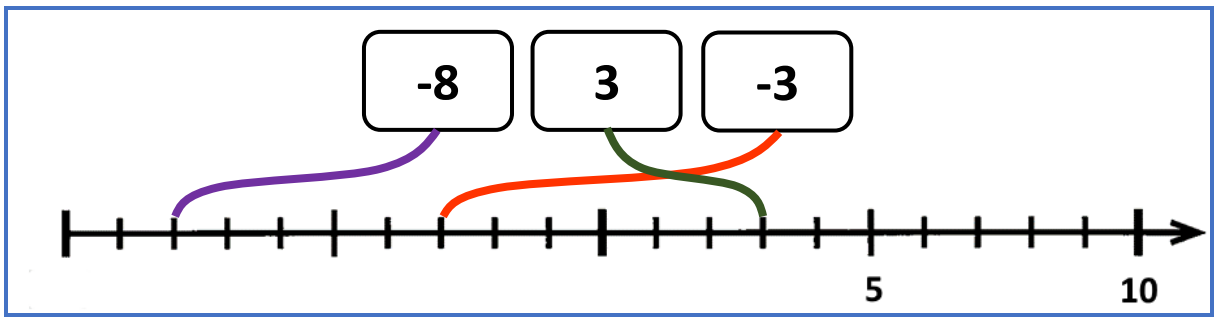

6. **Hvilket tall peker pila på?**

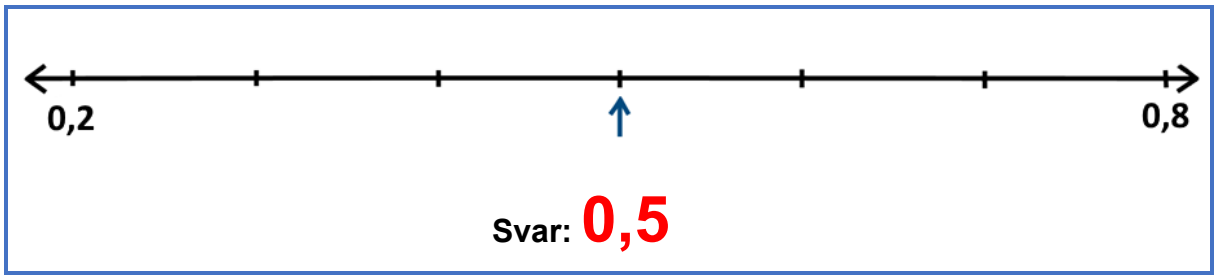

Svar: **0,5**

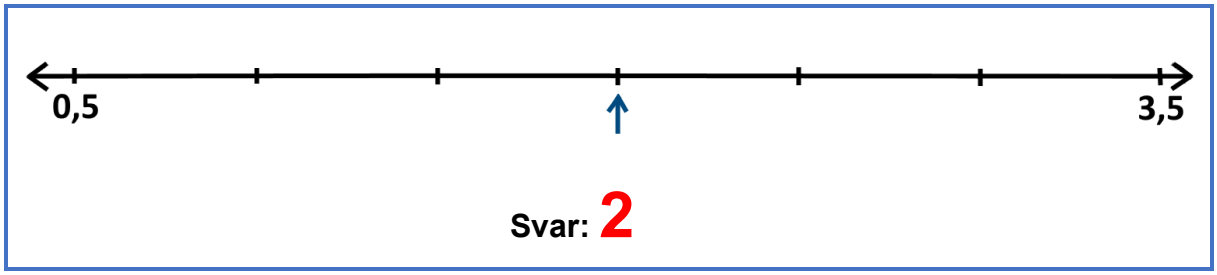

Svar: **2**

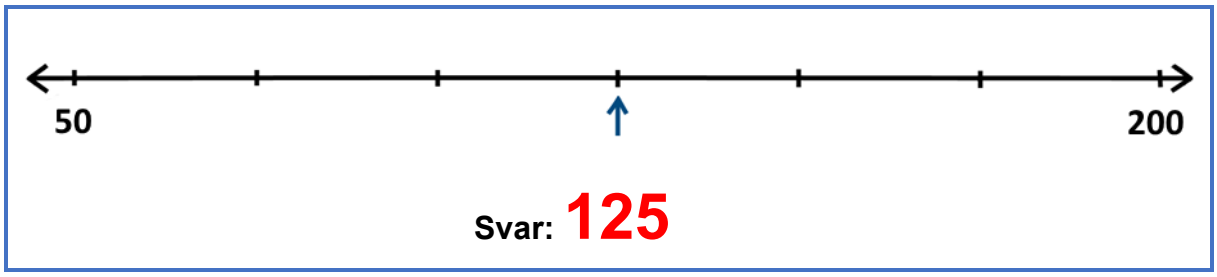

Svar: **125**

7. Regn ut

7 + **14** = 21	38 = 29 + **9**
16 + 7 = **11** + 12	23 + 2 = **16** + 9
35 – **18** = 17	10 = 23 – **13**
20 – 5 = 23 – **8**	23 – 5 = **21** – 7
7 • 8 = **56**	9 • 6 = **54**
12 • 8 = **96**	11 • 4 = **44**
15 : 5 = **3**	100 : 25 = **4**
36 : 3 = **12**	4 : 4 = **1**

8. Regn ut og skriv svaret

Hanne skal hente frukt til hele klassen sin. Hver elev skal ha en halv banan. I klassen til Hanne er det 24 elever.

Hvor mange bananer må Hanne hente? **Svar:** **12**

Lina selger kakebokser for skøyteklubben.
Hun selger hver kakeboks for 50 kr.
Skøyteklubben har betalt 20 kr for hver boks.

Hvor mye tjener skøyteklubben hvis Lina selger 10 bokser? **Svar:** **300**

9. Skriv som liter

30 dl = **3** *l*	6 dl = **0,6** *l*	122 dl = **12,2** *l*

10. Skriv som meter

300 cm = **3** *m*	50 cm = **0,5** *m*	250 mm = **0,25** *m*

11. Skriv som kilogram

3000 g = **3** *kg*	12 hg = **1,2** *kg*	385 g = **0,385** *kg*

12. Hvilken sirkel er ⅓ fargelagt? Sett kryss på riktig sirkel.

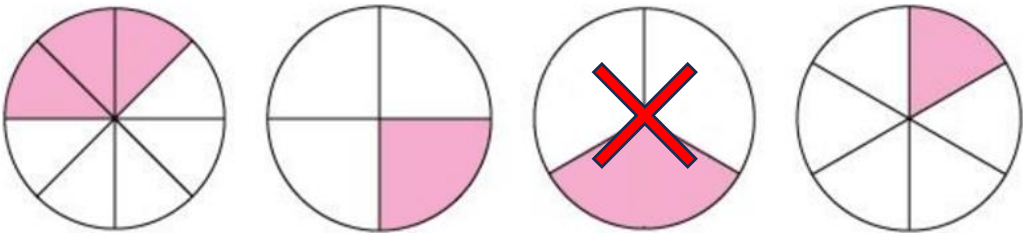

13. Skriv to klokkeslett til hver klokke.

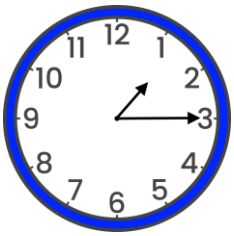

01.15

13.15

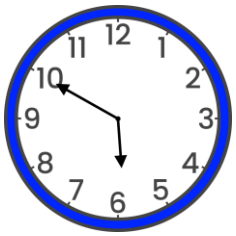

05.50

17.50

14. Skriv klokkeslettene med ord

14.30 = _____

06.45 = _____

21.15 = _____

15. Lag et rektangel med areal på 12 cm²

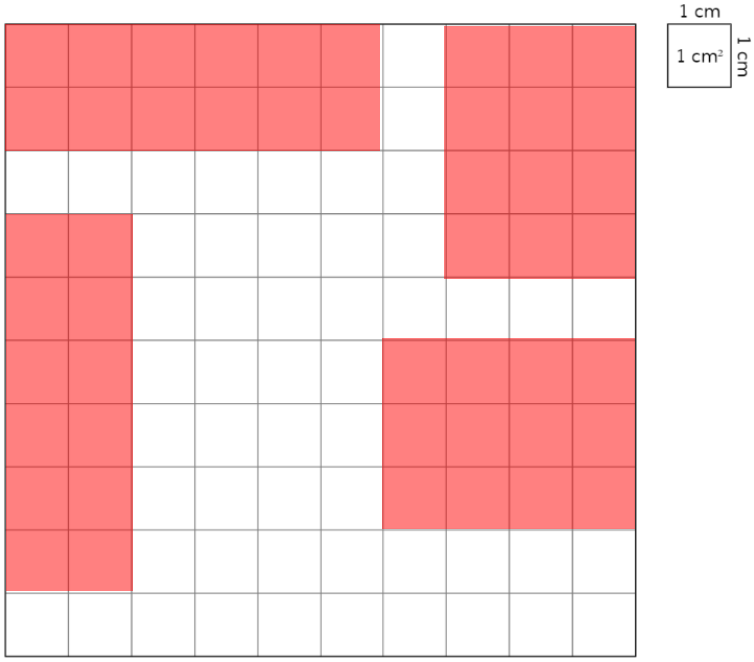

16. Regn ut

		3	6
+	3	5	2
=	**3**	**8**	**8**

	1		
	4	8	3
+	2	7	6
=	**7**	**5**	**9**

	1	1	1	
	2	4	7	5
+	1	8	2	5
=	**4**	**3**	**0**	**0**

	5	6	8
-	1	5	6
=	**4**	**1**	**2**

			10
	5	~~8~~	2
-	2	7	6
=	**3**	**0**	**6**

		10	10	10
	~~5~~	0	0	0
-		6	4	8
=	**4**	**3**	**5**	**2**

17. Løs oppgaven

Friidrettsmerket for barneskolen	Gull		Sølv		Bronse	
	Gutter	Jenter	Gutter	Jenter	Gutter	Jenter
60 m	10 s	10,5 s	10,6 s	11 s	11,2 s	11,5 s
200 m	33 s	35 s	37 s	39 s	39 s	43 s

Tabellen over viser noen krav for å få friidrettsmerket i gull, sølv eller bronse. Fire elever løp 60-meter i gymtimen. Tabellen nedenfor viser tidene de fikk.

Gutter	Tid 60-meter
Arne	10,1 s
Theo	10,5 s

Jenter	Tid 60-meter
Eva	10,6 s
Iselin	10,4 s

Hvem av elevene greide kravet til gull?

Svar: **Iselin**

18. Løs oppgaven

Filip har en aktiv hund som er 20 kg. Hunden får to måltid hver dag.

	AKTIV HUND	IKKE-AKTIV HUND
	Daglig aktivitet: mer enn en time	*Daglig aktivitet: mindre enn en time*
Antall kg	**Gram per dag**	**Gram per dag**
2 kg	40 g	30 g
5 kg	90 g	60 g
10 kg	150 g	90 g
20 kg	240 g	160 g
30 kg	360 g	240 g
40 kg	440 g	280 g
50 kg	510 g	330 g

Hvor mange gram mat skal hunden ha til hvert måltid?

Svar: **120 g**

Klasse: _____

Oppg.nr.	Tema	Resultat	Prosent	Av totalt
1	Tall/mengde			2
2	Tall med bokstaver			4
3	Avrunding			4
4	Tallrekke			3
5	Tallinje			6
6	Tallinje			3
7	De fire regneartene			16
8	Tekstoppgave			2
9	Omgjøring - liter			3
10	Omgjøring - meter			3
11	Omgjøring - kilogram			3
12	Brøk			1
13	Klokka			4
14	Klokka			3
15	Areal			1
16	Oppstilte regnestykker			6
17	Tabell			1
18	Tabell			1
				66

Sjekkliste etter prøven

✓ se nærmere på resultatene til elever som skårer under eller like over bekymringsgrensen

✓ vurdere hva de klarer / ikke klarer på de enkelte prøvene/oppgavene

✓ se resultatene i sammenheng med annen informasjon om eleven, blant annet observasjoner gjort under prøven

✓ sørge for at elevene og foreldrene til elever som trenger ekstra oppfølging, får tilbakemelding om resultatene og informasjon om videre oppfølging

Spørsmål til refleksjon og diskusjon

✓ Er resultatet som forventet?

✓ Ser vi mønstre/tendenser i resultatene på trinnet?

✓ Har vi annen informasjon som bekrefter eller avkrefter resultatene fra kartleggingsprøven?

✓ Viser resultatene fra kartleggingsprøven at det er behov for ytterligere kartlegging?

✓ Hvilke konsekvenser får resultatene for trinnets videre arbeid med regning i alle fag?

✓ Hva kan vi gjøre for å forbedre de resultatene vi ikke er fornøyde med?

✓ Hvilke tiltak kan vi iverksette overfor elever under og like over bekymringsgrensen?