6. trinn
høsten

Lærerveiledning regneferdigheter

Bekymringsgrense: 27

1. Hvor mye? Sett ring rundt riktig svar.

104 kr	113 kr	117 kr	171 kr

176 kr	226 kr	626 kr	636 kr

2. Skriv tallene med siffer.

Tre tusen, to hundre og førtifire = **3 244**

Tretten tusen og atten = **13 018**

Trettini tusen, åtte hundre og sekstitre = **39 863**

3. Rund av til nærmeste hundrer.

120 ≈ **100**	150 ≈ **200**
349 ≈ **300**	852 ≈ **900**
1736 ≈ **1700**	1256 ≈ **1300**

4. Rund av til nærmeste tidel. Sett kryss på riktig svar.

25,864 ≈	25,86	25,87	25,8	~~25,9~~
70,473 ≈	~~70,5~~	70,47	70,4	70,48
16,757 ≈	16,7	~~16,8~~	16,76	16,75

5. Tegn strek ned på riktig sted på tallinja.

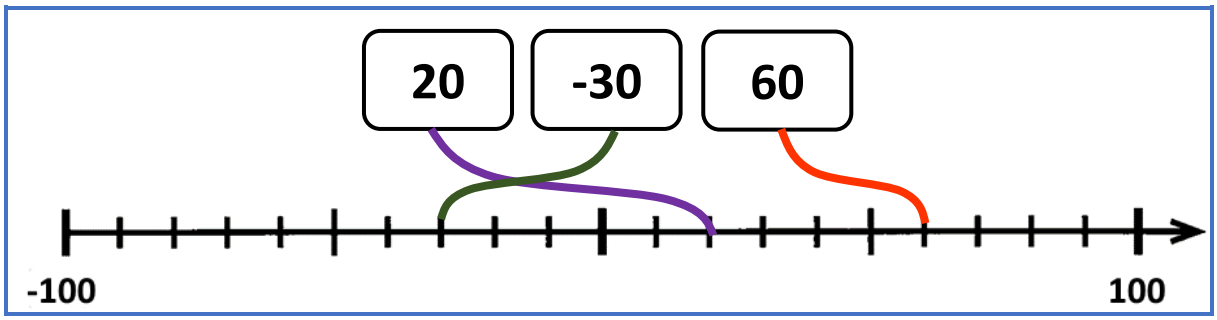

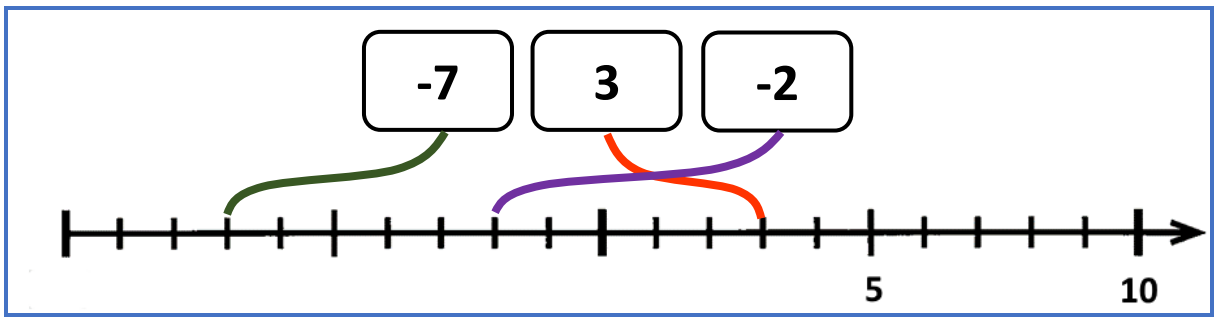

6. Hvilket tall peker pila på?

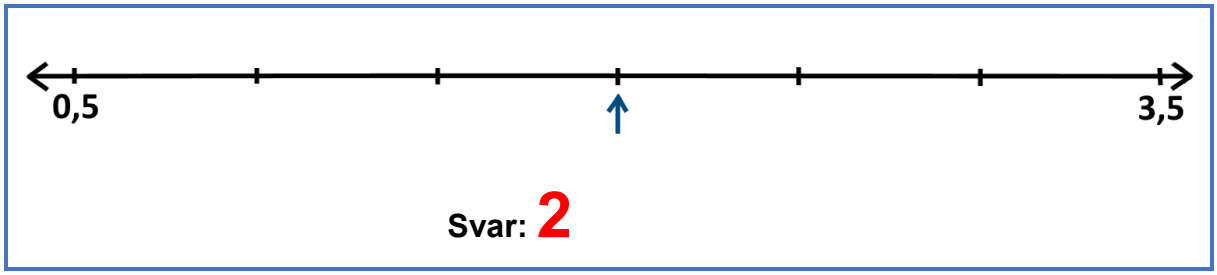

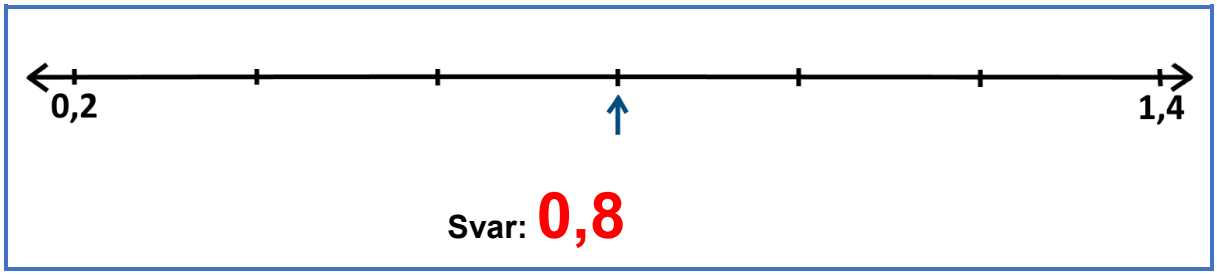

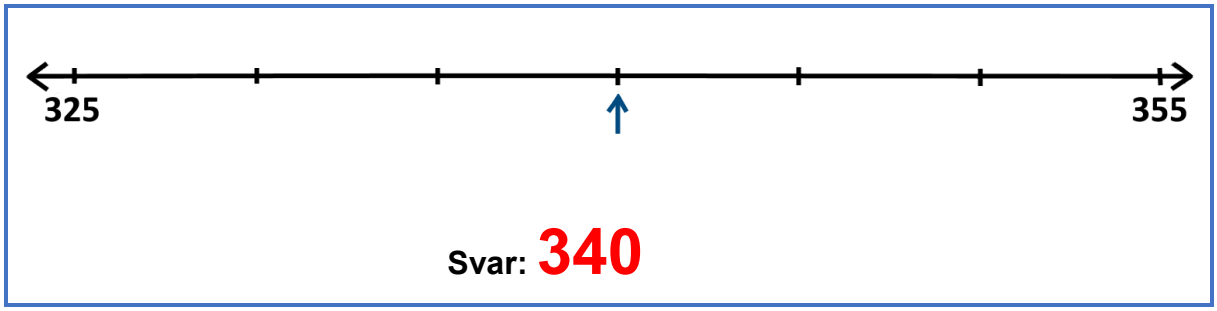

7. Regn ut

12 + 5 = **17**	19 + 12 = **31**
375 + 23 = **398**	379 + 59 = **438**
34 – 6 = **28**	340 – 27 = **313**
8 – 15 = **-7**	220 – 132 = **88**
6 • 4 = **24**	9 • 6 = **54**
12 • 8 = **96**	11 • 3 = **33**
15 : 5 = **3**	100 : 25 = **4**
36 : 3 = **12**	2 : 4 = **0,5**

8. Regn ut og skriv svaret

Langbakken skole arrangerte friidrettsdag. Espen og Noah hoppet stille lengde.
Espen hoppet 1 m og 20 cm, og Noah hoppet 95 cm.

Hvor mange centimeter lengre hoppet Espen enn Noah?

Svar: **25 cm**

Nina sparer til ny sparkesykkel som koster 2400 kr.
Hver uke tjener hun 200 kr på å lufte hunden til naboen, og 100 kr på barnepass.
I løpet av en uke bruker hun 100 kr på fritidsklubben.

Hvor mange uker må Nina spare for å få råd til sparkesykkelen?

Svar: **12 uker**

9. Regn ut

		2	7
+	1	6	0
=	**1**	**8**	**7**

	1		
	5	9	1
+	2	7	6
=	**8**	**6**	**7**

	1	1	1	
	1	3	7	5
+	1	8	3	5
=	**3**	**2**	**1**	**0**

	2	8	7
-		6	5
=	**2**	**2**	**2**

			10
	5	~~9~~	1
-	2	7	6
=	**3**	**1**	**5**

		10	10	10
	~~4~~	0	0	0
-		8	3	5
=	**3**	**1**	**6**	**5**

10. Velg ordet som beskriver hvor stor sannsynligheten er for å få ensfarget? Sett kryss på riktig svar.

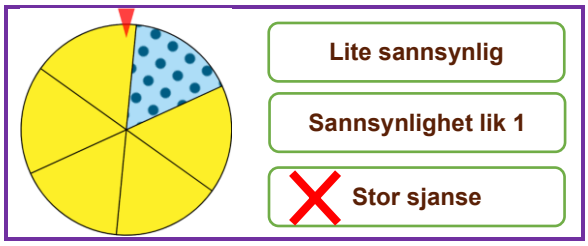

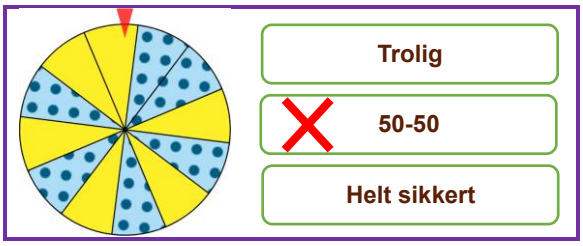

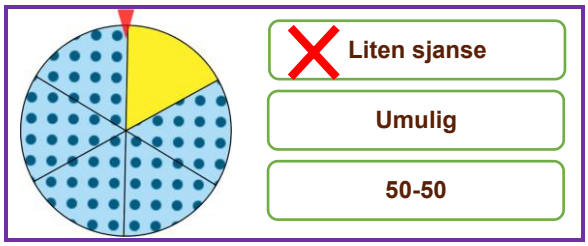

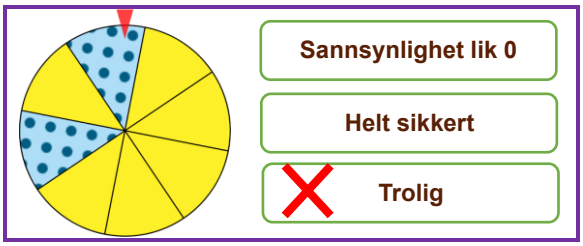

11. Fargelegg ⅓ av rektangelet

12. Hva heter figurene?

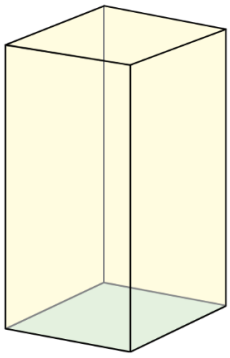

Prisme

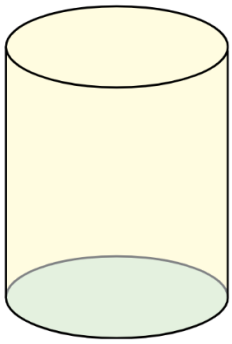

Sylinder

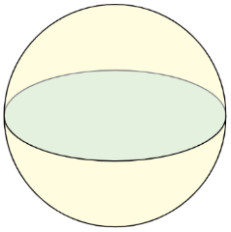

Kule

13. Lag et rektangel med areal på 12 cm^2

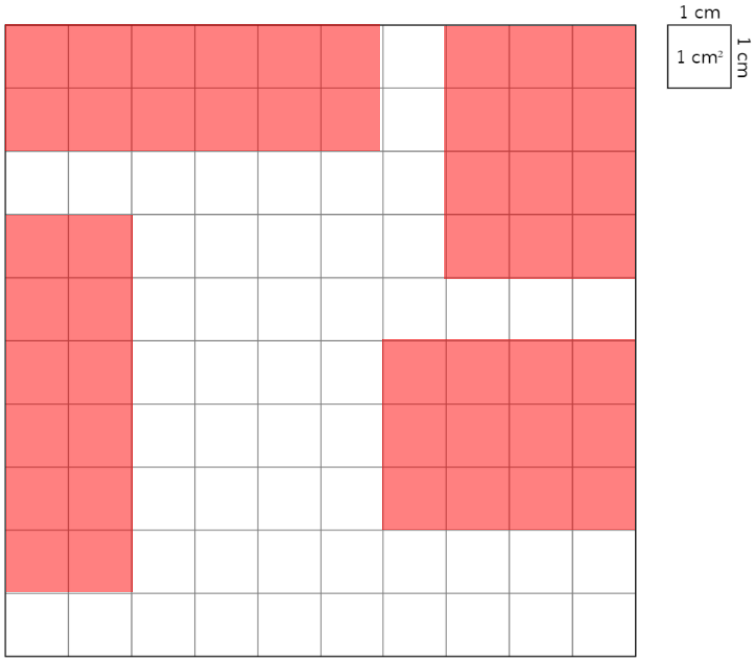

14. Skriv to klokkeslett til hver klokke.

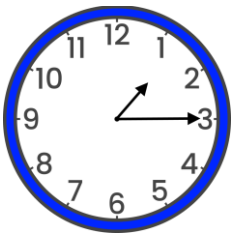

01.15

13.15

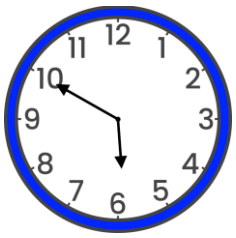

05.50

17.50

15. Løs oppgaven

Diagrammet viser hvor mange damer og herrer som deltok i vinter-OL mellom 1980 og 2018.

Hvilket årstall var det for første gang mer enn 1600 damer og herrer til sammen?

Svar: 1992

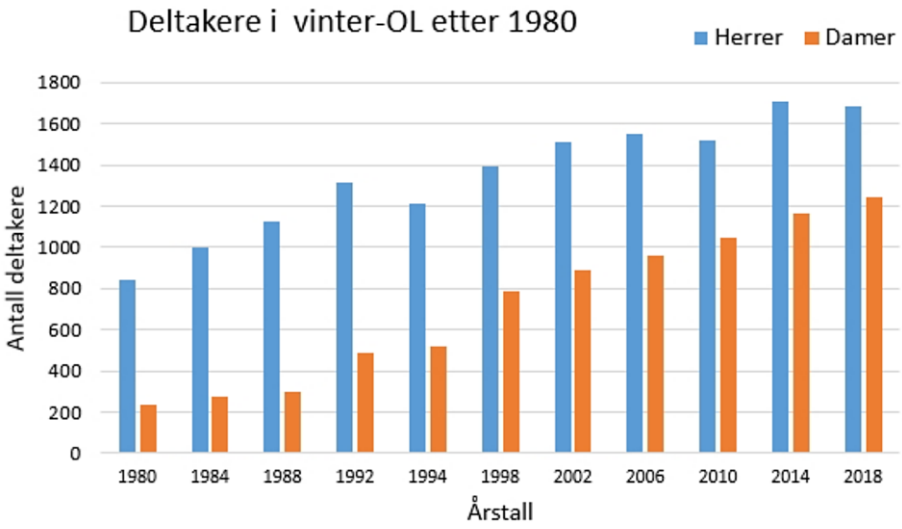

16. Løs oppgaven

Kari og Lars skal sjøsette båten lørdag formiddag.
Det må de gjøre når det er flo.

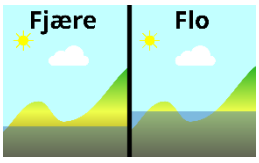

	Mandag	Tirsdag	Onsdag	Torsdag	Fredag	Lørdag	Søndag
Fjære	10:59 23:17	11:31 23:53	12:13	00:46 13:13	03:18 15:38	04:23 16:42	05:17 17:38
Flo	04:57 17:12	05:27 17:49	06:06 18:37	07:03 20:03	09:07 22:03	10:18 23:04	11:13 23:59

Tabell over flo og fjære

Når er det flo på lørdag formiddag? **Svar: 10:18**

Elev: _____

Oppg.nr.	Tema	Resultat	Av totalt
1	Tall/mengde		2
2	Tall med bokstaver		3
3	Avrunding		6
4	Avrunding		3
5	Tallinje		6
6	Tallinje		3
7	De fire regneartene		16
8	Tekstoppgave		2
9	Utregning		6
10	Sannsynlighet		4
11	Brøk		1
12	Geometriske figurer		3
13	Areal		1
14	Klokka		4
15	Diagram		1
16	Tabell		1
			62

Sjekkliste etter prøven

✓ se nærmere på resultatene til elever som skårer under eller like over bekymringsgrensen

✓ vurdere hva de klarer / ikke klarer på de enkelte prøvene/oppgavene

✓ se resultatene i sammenheng med annen informasjon om eleven, blant annet observasjoner gjort under prøven

✓ sørge for at elevene og foreldrene til elever som trenger ekstra oppfølging, får tilbakemelding om resultatene og informasjon om videre oppfølging

Spørsmål til refleksjon og diskusjon

✓ Er resultatet som forventet?

✓ Ser vi mønstre/tendenser i resultatene på trinnet?

✓ Har vi annen informasjon som bekrefter eller avkrefter resultatene fra kartleggingsprøven?

✓ Viser resultatene fra kartleggingsprøven at det er behov for ytterligere kartlegging?

✓ Hvilke konsekvenser får resultatene for trinnets videre arbeid med regning i alle fag?

✓ Hva kan vi gjøre for å forbedre de resultatene vi ikke er fornøyde med?

✓ Hvilke tiltak kan vi iverksette overfor elever under og like over bekymringsgrensen?