7. trinn
våren

Lærerveiledning regneferdigheter

Bekymringsgrense:

1. Finn tallet

Skriv tallet som er 8000 større enn 31 882	**39 882**
Skriv tallet som er 10 000 større enn 433 472	**443 472**
Skriv tallet som er 4 millioner mindre enn 85 674 539	**81 674 539**
Skriv tallet som er 100 000 mindre enn 9 079 580	**8 979 580**

2. Skriv tallene med siffer.

Fire tusen, to hundre og førtifem = **4 245**

To millioner, tretten tusen og atten = **2 013 018**

Trettini tusen, fem hundre og tjuetre = **39 523**

3. Rund av til nærmeste hundrer.

650 ≈ **700**	742 ≈ **700**
1751 ≈ **1800**	2966 ≈ **3000**

4. Fortsett tallrekkene

43	37	31	**35**	**29**	**23**
14	21	28	**35**	**42**	**49**
2,5	2,9	3,3	**3,7**	**4,1**	**4,5**

5. Tegn strek ned på riktig sted på tallinja.

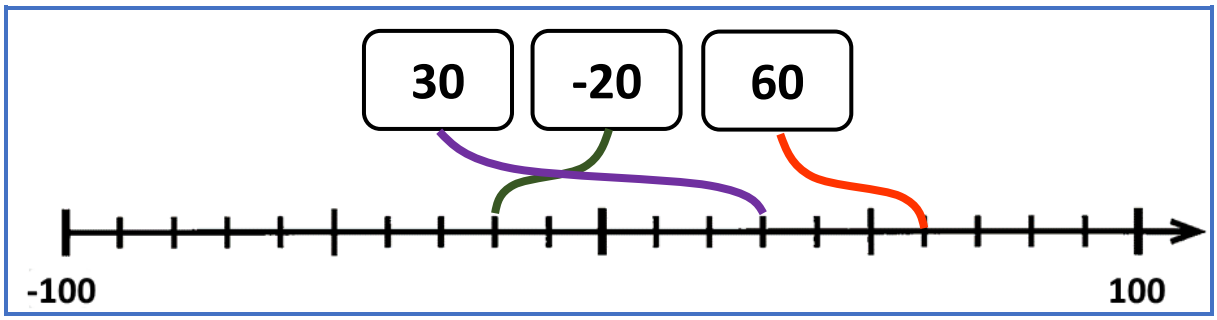

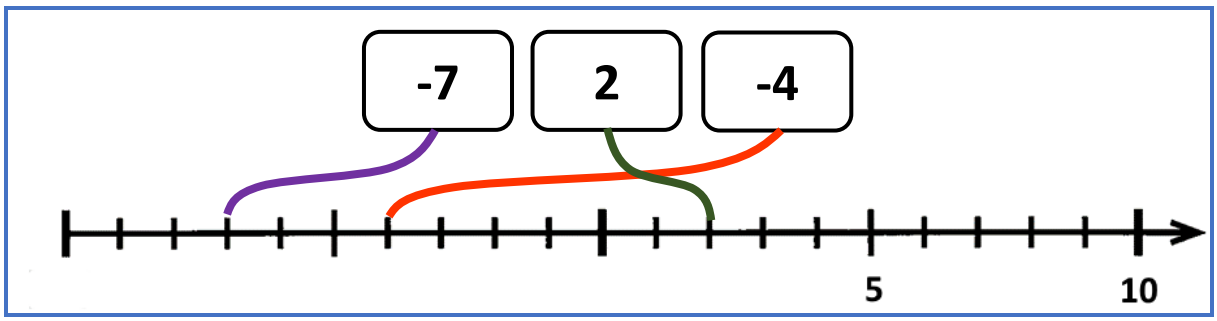

6. Hvilket tall peker pila på?

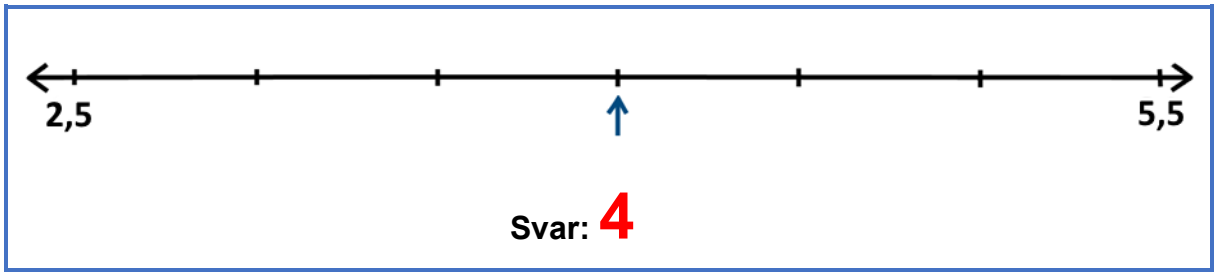

Svar: 4

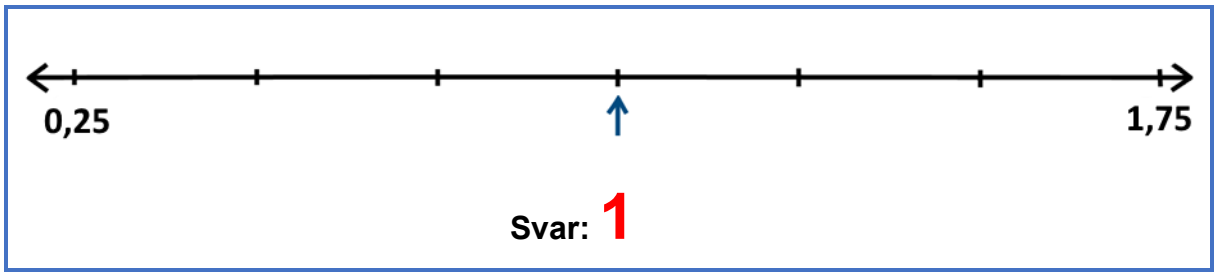

Svar: 1

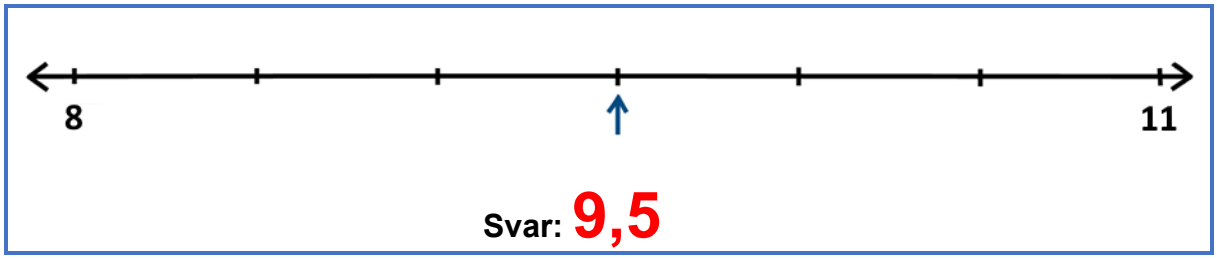

Svar: 9,5

7. Regn ut

7 + **14** = 21	38 = 29 + **9**
26 + 7 = **21** + 12	23 + 2 = **16** + 9
35 – **17** = 18	14 = 33 – **19**
20 – 5 = 33 – **18**	23 – 5 = **25** – 7
7 • 8 = **56**	9 • 6 = **54**
12 • 8 = **96**	11 • 4 = **44**
15 : 5 = **3**	100 : 25 = **4**
360 : 3 = **120**	4 : 4 = **1**

8. Regn ut og skriv svarene

Sara skal sy nye gardiner til rommet sitt. Hun måler og finner ut at hun trenger 0,5 m gardinstoff per vindu.
Sara skal kjøpe gardinstoff til fem vindu.

Hvor mange meter gardinstoff skal Sara kjøpe?

Svar: 2,5 m

Det dypeste punktet i Nordfjorden i Vestland fylke er -565 meter over havet (moh.). Blånibba, som ligger ved fjorden, er 1670 moh.

Hvor stor høydeforskjell er det mellom Blånibba og det dypeste punktet i Nordfjorden?

Svar: 2235 m

9. Fyll ut de tomme feltene slik at regnestykkene blir riktig

	2	8	7
+	2	6	0
=	5	4	7

	2	4	2	3
-	1	4	1	3
=	1	0	1	0

10. Målestokk

Leiv Eriksson oppdaget Nord-Amerika i vikingtiden. Kartet viser at han reiste fra Grønland og oppdaget tre steder som han kalte Helleland, Markland og Vinland

Reiseruta fra Grønland til Helleland er 20 cm på kartet. Kartet er i målestokk 1 : 5 000 000

Hvor mange kilometer var reiseruta fra Grønland til Helleland i virkeligheten?

Svar: 1000 km

11. Brøk

Fargelegg to tredeler av rektangelet.



Fargelegg to tolvdeler av rektangelet

12. Skriv to klokkeslett til hver klokke.

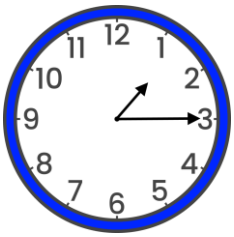

01.15

13.15

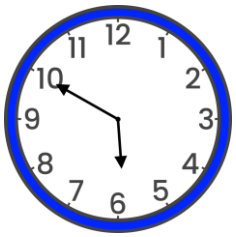

05.50

17.50

13. Lag et rektangel med areal på 8 cm²

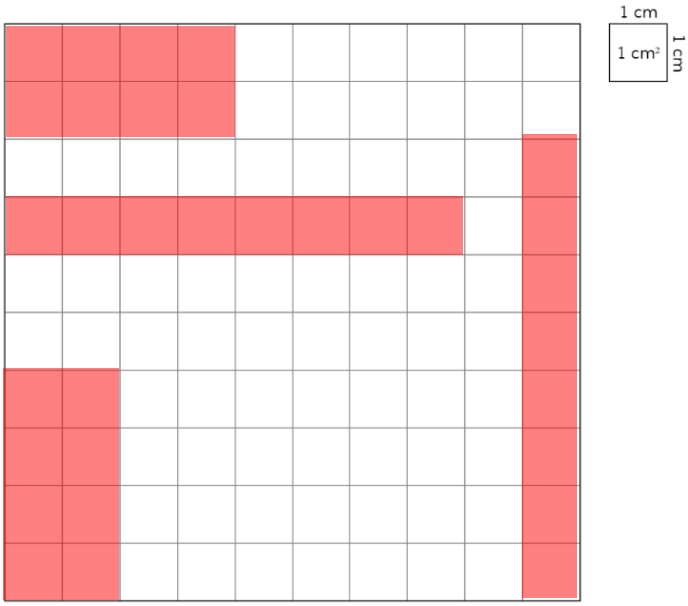

14. Omkrets og areal

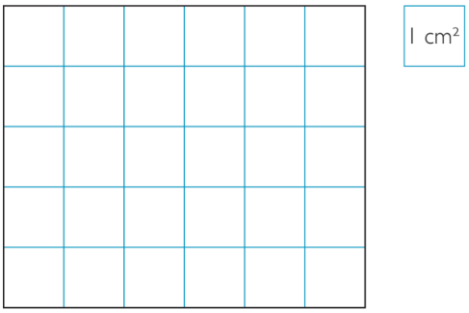

Regn ut omkrets og areal av figuren til venstre.

Omkrets: **22 cm**

Areal: **30 cm²**

15. Skriv som liter

30 dl = **3** *l*	6 dl = **0,6** *l*	122 dl = **12,2** *l*

16. Skriv som meter

300 cm = **3** *m*	50 cm = **0,5** *m*	250 mm = **0,25** *m*

17. Skriv som kilogram

3000 g = **3** *kg*	12 hg = **1,2** *kg*	385 g = **0,385** *kg*

18. Løs oppgaven

Diagrammet under viser antall år det var forventet at en person ville gå på skole i noen land i 1999 og 2012.

I hvilke land var det forventet at en person gikk kortere tid på skole i 2012 enn i 1999?

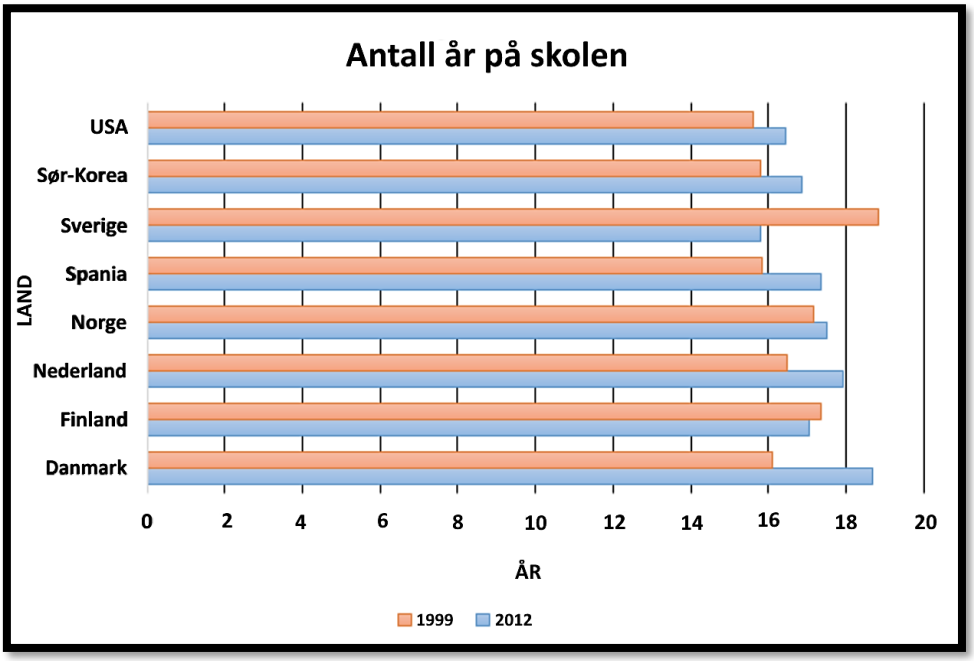

Svar: **Sverige og Finland**

19. Løs oppgaven

Pelle har spurt 80 elever på skolen om de skal feire halloween. Halvparten av dem svarte ja.

Hvor mange elever svarte nei?

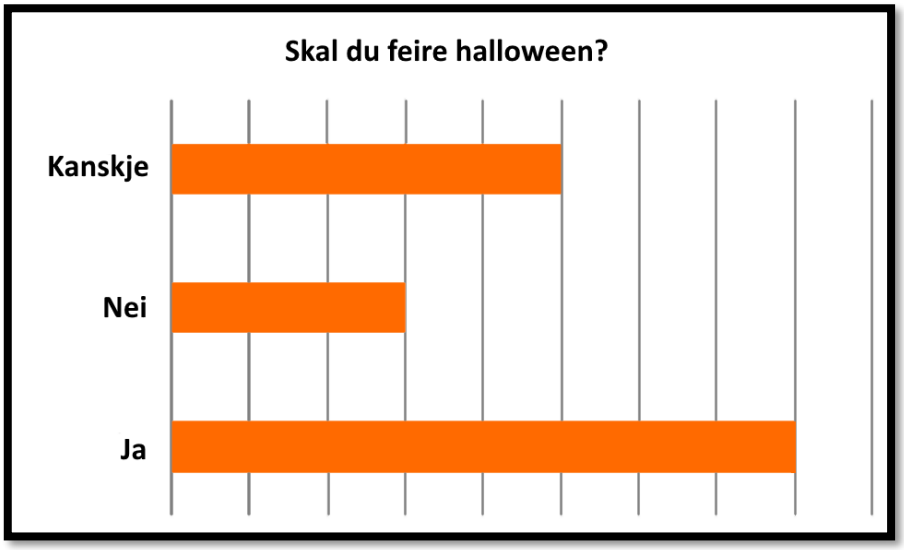

Svar: **30**

Klasse: _____

Oppg.nr.	Tema	Resultat	Prosent	Av totalt
1	Tall/mengde			4
2	Tall med bokstaver			3
3	Avrunding			4
4	Tallrekke			3
5	Tallinje			6
6	Tallinje			3
7	De fire regnearter			16
8	Tekstoppgave			2
9	Utregning			2
10	Målestokk			1
11	Brøk			2
12	Klokka			4
13	Areal			1
14	Omkrets og areal			2
15	Omgjøring - liter			3
16	Omgjøring - meter			3
17	Omgjøring - kilogram			3
18	Diagram			2
19	Diagram			1
				65

Sjekkliste etter prøven

✓ se nærmere på resultatene til elever som skårer under eller like over bekymringsgrensen

✓ vurdere hva de klarer / ikke klarer på de enkelte prøvene/oppgavene

✓ se resultatene i sammenheng med annen informasjon om eleven, blant annet observasjoner gjort under prøven

✓ sørge for at elevene og foreldrene til elever som trenger ekstra oppfølging, får tilbakemelding om resultatene og informasjon om videre oppfølging

Spørsmål til refleksjon og diskusjon

✓ Er resultatet som forventet?

✓ Ser vi mønstre/tendenser i resultatene på trinnet?

✓ Har vi annen informasjon som bekrefter eller avkrefter resultatene fra kartleggingsprøven?

✓ Viser resultatene fra kartleggingsprøven at det er behov for ytterligere kartlegging?

✓ Hvilke konsekvenser får resultatene for trinnets videre arbeid med regning i alle fag?

✓ Hva kan vi gjøre for å forbedre de resultatene vi ikke er fornøyde med?

✓ Hvilke tiltak kan vi iverksette overfor elever under og like over bekymringsgrensen?