3. trinn
våren

Lærerveiledning regneferdigheter

Bekymringsgrense: 32 poeng

1. Hvor mye?

Eksempel

12 kr	13 kr	14 kr	15 kr

52 kr	60 kr	65 kr	70 kr

104 kr	113 kr	117 kr	171 kr

176 kr	226 kr	626 kr	636 kr

2. Tegn strek ned på riktig sted på tallinja.

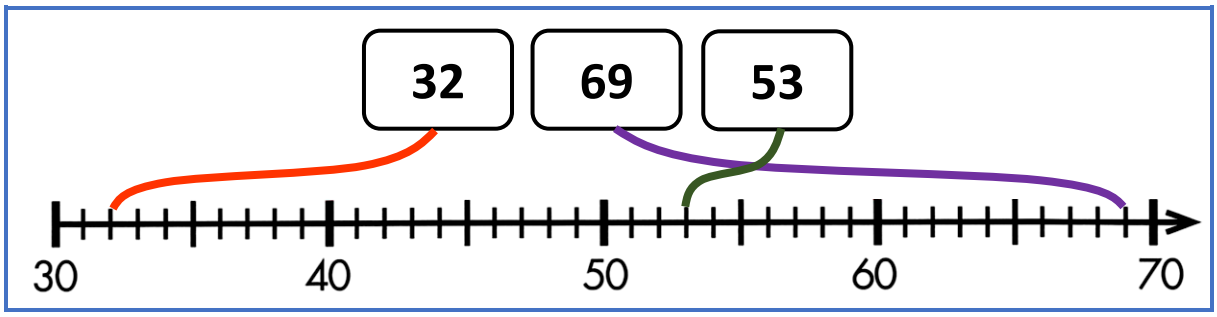

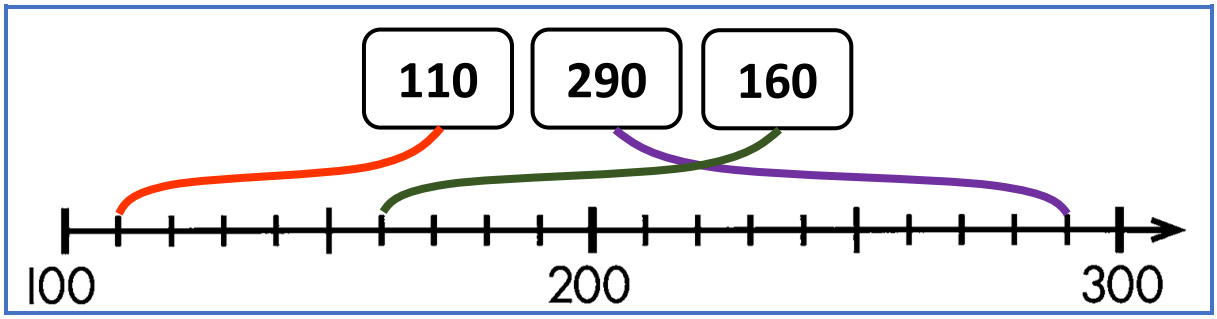

3. Nærmeste tall

Eksempel

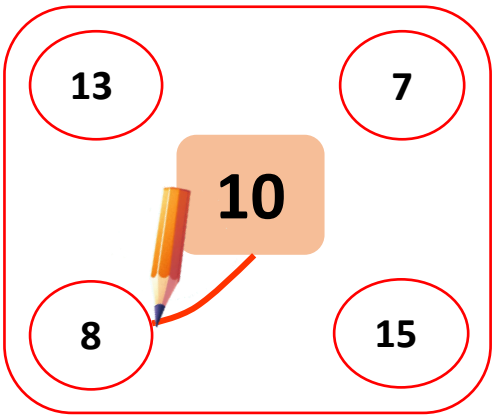

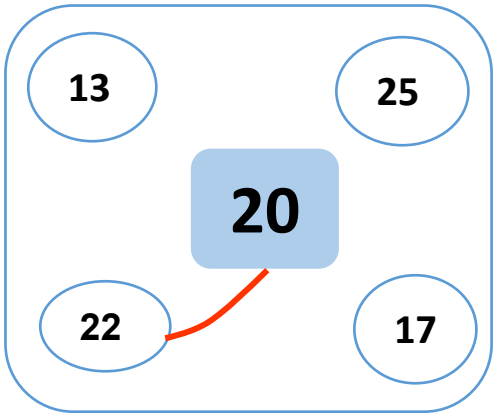

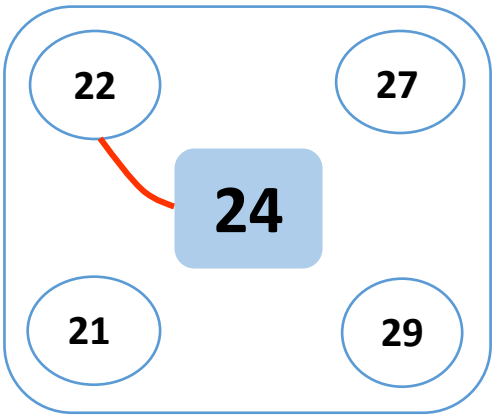

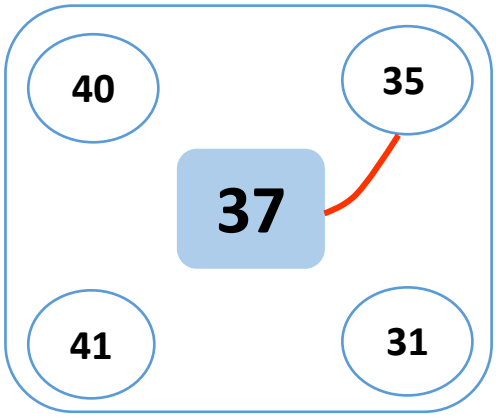

4. Skriv to klokkeslett til hver klokke.

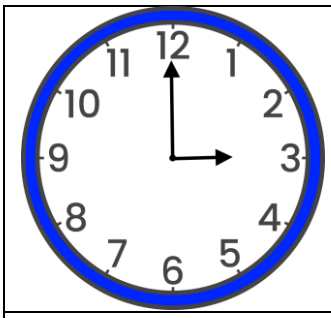		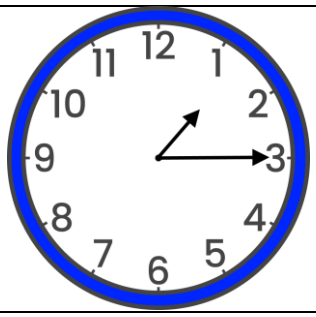		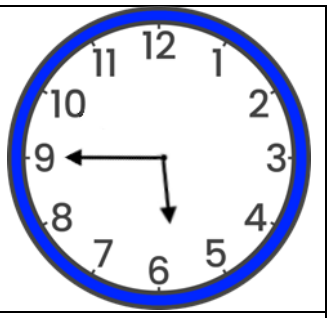
03.00 15.00		01.15 13.15		05.45 17.45

5. Utvidet form

Eksempel

200	+	30	+	8	=	238
		60	+	4	=	64
800	+	50	+	2	=	852

6. Skriv som ett tall med tallsymboler.

Eksempel: Trettitre = 33 .

Femtito = **52**

Fem hundrere, åtte tiere og tre enere = **583**

Tre tusen og førtien = **3041**

Tolv hundrere og seks tiere = **1260**

7. Tallrekker

Eksempel

2	4	6	8	10	12
7	10	13	**16**	**19**	**22**
43	41	39	**37**	**35**	**33**
26	36	46	**56**	**66**	**76**
15	20	25	**30**	**35**	**40**

8. Tegn ring rundt halvparten

Eksempel

2 kr	3 kr	4 kr	5 kr

10 kr	20 kr	25 kr	30 kr

46 kr	56 kr	57 kr	62 kr

13 kr	23 kr	33 kr	43 kr

9. Tegn ring rundt det dobbelte

Eksempel

8 kr	9 kr	10 kr	11 kr

60 kr	70 kr	80 kr	90 kr

29 kr	30 kr	32 kr	33 kr

71 kr	72 kr	73 kr	74 kr

10. Skriv tallene i stigende rekkefølge

8 12 17 6 14

Eksempel

6	8	12	14	17

94 109 89 114 100

89	94	100	109	114

199 217 272 73 98

73	98	199	217	272

209 214 139 198 230

139	198	209	214	230

11. Regn ut

		3	7
+	2	6	1
=	**2**	**9**	**8**

	1		
	4	6	3
+	2	7	6
=	**7**	**3**	**9**

	1	1	
	1	3	7
+	2	8	3
=	**4**	**2**	**0**

	2	7	8
-	1	5	6
=	**1**	**2**	**2**

	5	9	7
-	2	7	6
=	**3**	**2**	**1**

		10	10
	~~5~~	~~2~~	3
-	1	7	4
=	**3**	**4**	**9**

12. Regn ut

14 + 5 = **19**	16 + 9 = **25**
7 + **13** = 20	38 = 29 + **9**

13. Regn ut

18 – 5 = **13**	20 – 4 = **16**
15 – **8** = 7	10 = 23 – **13**

14. Regn ut

3 • 1 = **3**	3 • 5 = **15**
2 • 6 = **12**	4 • 2 = **8**

15. Regn ut

10 : 2 = **5**	10 : 5 = **2**
8 : 2 = **4**	6 : 3 = **2**

16. Hvor mye? Regn ut og skriv svarene.

I en togvogn er det ni seter.
Det sitter to personer på hvert sete.

Hvor mange personer sitter i vognen?

Det sitter **18** personer i vognen.

Oda har 20 ballonger.
Hun gir seks ballonger til hvert av de tre søskene sine

Hvor mange ballonger har Oda igjen?

Oda har **2** ballonger igjen.

Janne har 20 kr. Erlend har 5 kr mer.
Henrik har like mye som Janne og Erlend til sammen.

Hvor mange kroner har Henrik?

Henrik har **45** kr.

Hvor mange kroner har de til sammen alle tre?

De har **90** kr til sammen alle tre.

Elev: _____

Oppg.nr.	Tema	Resultat	Prosent	Av totalt
1	Tall/mengde			3
2	Tall/mengde/Tallinje			6
3	Nærmeste tall			3
4	Klokka			6
5	Utvidet form			2
6	Titallssystemet			4
7	Tallrekker			4
8	Halvparten			3
9	Dobbelte			3
10	Rekkefølge			3
11	Oppstilte stykker			6
12	Addisjon			4
13	Subtraksjon			4
14	Multiplikasjon			4
15	Divisjon			4
16	Tekstoppgaver			4
				63

Sjekkliste etter prøven

✓ se nærmere på resultatene til elever som skårer under eller like over bekymringsgrensen

✓ vurdere hva de klarer / ikke klarer på de enkelte prøvene/oppgavene

✓ se resultatene i sammenheng med annen informasjon om eleven, blant annet observasjoner gjort under prøven

✓ sørge for at elevene og foreldrene til elever som trenger ekstra oppfølging, får tilbakemelding om resultatene og informasjon om videre oppfølging

Spørsmål til refleksjon og diskusjon

✓ Er resultatet som forventet?

✓ Ser vi mønstre/tendenser i resultatene på trinnet?

✓ Har vi annen informasjon som bekrefter eller avkrefter resultatene fra kartleggingsprøven?

✓ Viser resultatene fra kartleggingsprøven at det er behov for ytterligere kartlegging?

✓ Hvilke konsekvenser får resultatene for trinnets videre arbeid med regning i alle fag?

✓ Hva kan vi gjøre for å forbedre de resultatene vi ikke er fornøyde med?

✓ Hvilke tiltak kan vi iverksette overfor elever under og like over bekymringsgrensen?