4. trinn
høsten

Lærerveiledning regneferdigheter

Bekymringsgrense: 21

1. Hvor mye? Sett ring rundt riktig svar.

12 kr	13 kr	14 kr	15 kr

52 kr	60 kr	65 kr	70 kr

104 kr	113 kr	117 kr	171 kr

176 kr	226 kr	626 kr	636 kr

2. Tegn strek ned på riktig sted på tallinja.

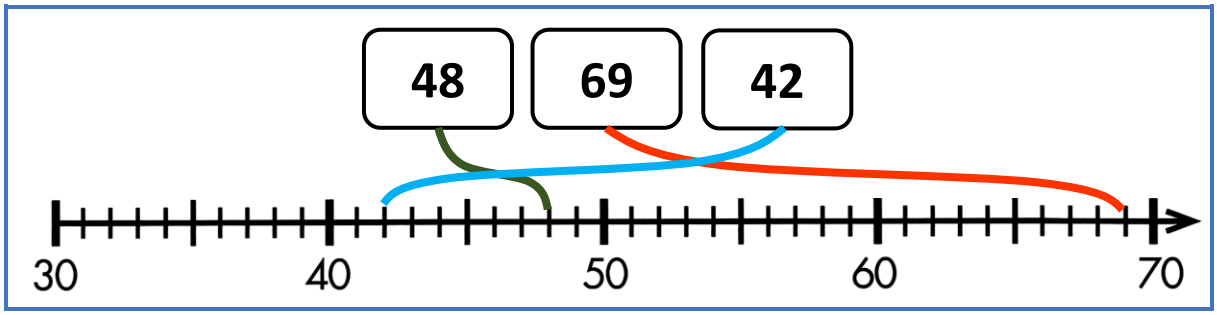

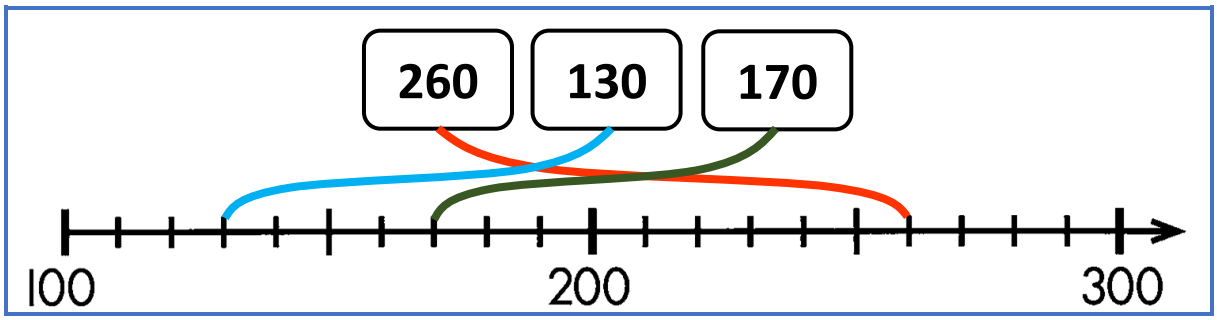

3. Hvilket tall peker pila på?

Svar: **0,5**

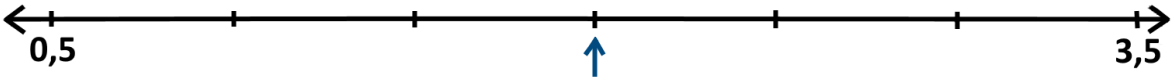

Svar: **2**

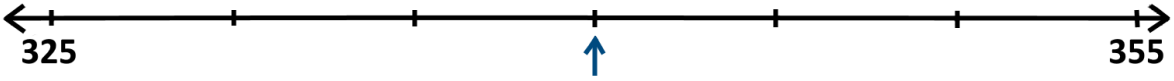

Svar: **340**

4. Nærmeste hundrer

120 ≈ **100**	172 ≈ **200**
377 ≈ **400**	852 ≈ **900**

5. Fortsett tallrekkene

5	10	15	**20**	**25**	**30**
43	42	41	**40**	**39**	**38**
14	24	34	**44**	**54**	**64**
15	17	19	**21**	**23**	**25**

6. Regn ut

12 + 5 = **17**	19 + 12 = **31**
35 + 23 = **58**	39 + 19 = **58**
18 – 6 = **12**	20 – 7 = **13**
145 – 87 = **58**	350 – 132 = **218**
2 • 3 = **6**	3 • 6 = **18**
7 • 2 = **14**	8 • 3 = **24**
4 : 2 = **2**	9 : 3 = **3**
10 : 5 = **2**	10 : 10 = **1**

7. Regn ut

		2	7
+	1	6	0
=	**1**	**8**	**7**

	1		
	5	9	1
+	2	7	6
=	**8**	**6**	**7**

	1	1	1	
	1	3	7	5
+	1	8	3	5
=	**3**	**2**	**1**	**0**

	2	8	7
-		6	5
=	**2**	**2**	**2**

			10
	5	~~9~~	1
-	2	7	6
=	**3**	**1**	**5**

		10	10	10
	~~4~~	0	0	0
-		8	3	5
=	**3**	**1**	**6**	**5**

8. Regn ut og skriv svaret

Silje har 1638 kr i banken.
Hun vil ta ut så mye som mulig av pengene i hundrelapper.

Hvor mange hundrelapper vil Silje få? **Svar:** **16 stk**

Hunden til Petter fikk tre valper.
Petter skal selge hver valp for 9000 kr.

Hvor mange kroner vil han få for alle valpene? **Svar:** **27 000 kr**

Anne har 418 kr. Hun kjøper en is til 39 kr.

Hvor mange kroner har Anne igjen nå?

Svar: **379 kr**

Til utregning:

9. Skriv to klokkeslett til hver klokke.

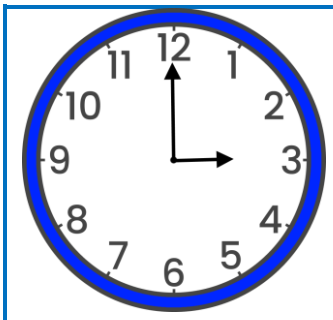

03.00

15.00

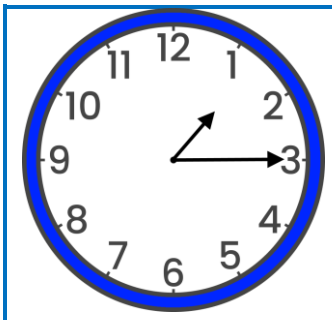

01.15

13.15

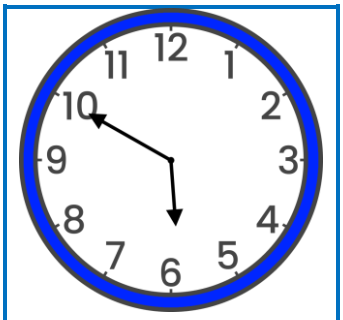

05.50

17.50

10. Hvilken speiling er riktig? Sett kryss på riktig speiling.

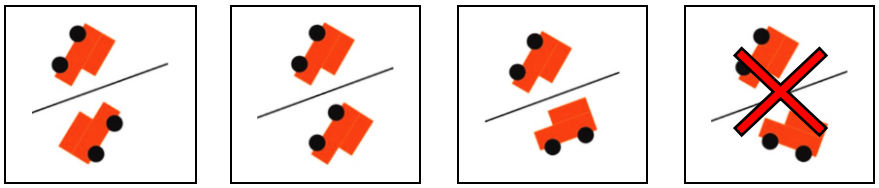

11. Skriv som liter

20 dl = **2** *l*	4 dl = **0,4** *l*	105 dl = **10,5** *l*

12. Skriv som meter

100 cm = **1** m	60 cm = **0,6** m

13. Skriv som kilogram

2000 g = **2** kg	12 hg = **1,2** kg

14. Regn ut og skriv svaret

Tabellen viser den danske tellemåten.

Dansk tellemåte	Utregning
Tres	3 • 20
Firs	4 • 20
Fems	5 • 20
Halvtreds	3 • 20 – 10
Halvfjerds	4 • 20 – 10
Halvfems	5 • 20 – 10

Hvor mye er halvfjerds?

Svar: 70

15. Finn svaret

Diagrammet under viser lengden til de lengste elvene i Europa.

Hvor mange elver er lengre enn 2100 km?

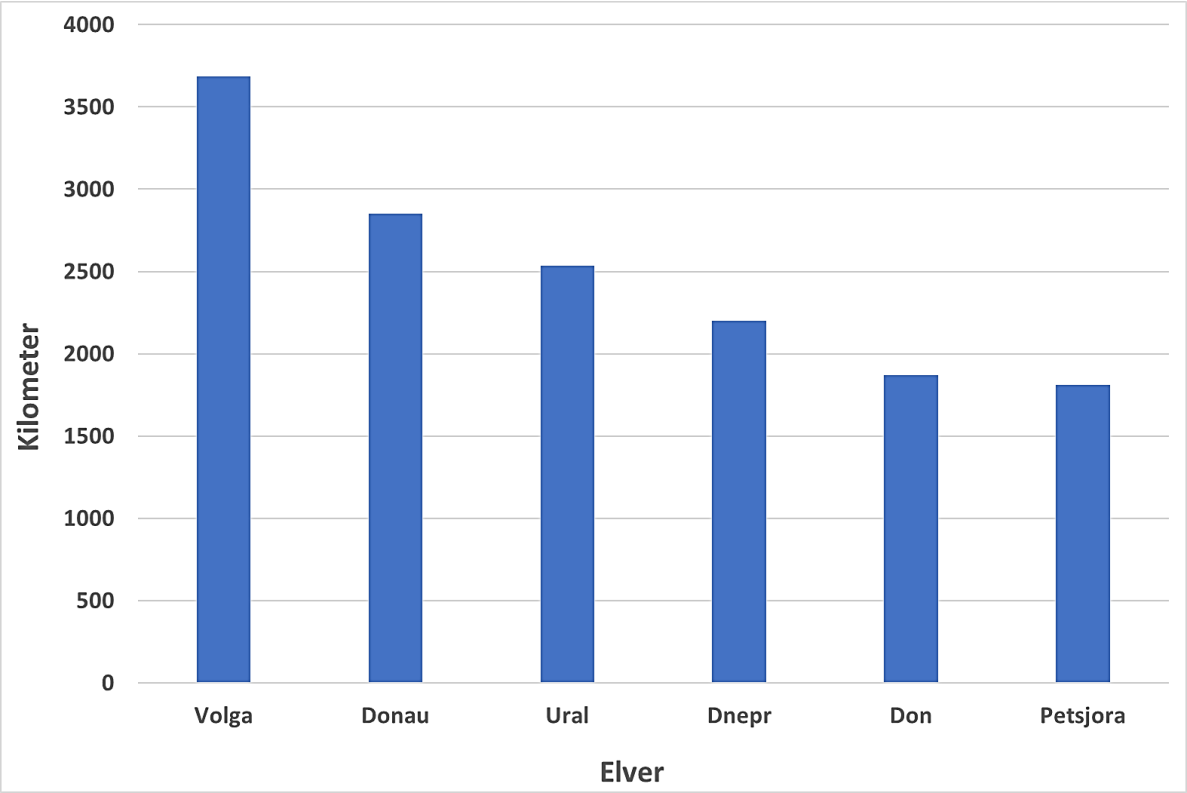

Svar: 4

Elev: _____

Oppg.nr.	Tema	Resultat	Av totalt
1	Tall/mengde		4
2	Tallinje		2
3	Tallinje		3
4	Avrunding		4
5	Tallrekke		4
6	De fire regneartene		16
7	Utregning		6
8	Tekstoppgave		3
9	Klokka		6
10	Speiling		1
11	Omregning - liter		3
12	Omregning - meter		4
13	Tabell		1
14	Diagram		1
			58

Sjekkliste etter prøven

✓ se nærmere på resultatene til elever som skårer under eller like over bekymringsgrensen

✓ vurdere hva de klarer / ikke klarer på de enkelte prøvene/oppgavene

✓ se resultatene i sammenheng med annen informasjon om eleven, blant annet observasjoner gjort under prøven

✓ sørge for at elevene og foreldrene til elever som trenger ekstra oppfølging, får tilbakemelding om resultatene og informasjon om videre oppfølging

Spørsmål til refleksjon og diskusjon

✓ Er resultatet som forventet?

✓ Ser vi mønstre/tendenser i resultatene på trinnet?

✓ Har vi annen informasjon som bekrefter eller avkrefter resultatene fra kartleggingsprøven?

✓ Viser resultatene fra kartleggingsprøven at det er behov for ytterligere kartlegging?

✓ Hvilke konsekvenser får resultatene for trinnets videre arbeid med regning i alle fag?

✓ Hva kan vi gjøre for å forbedre de resultatene vi ikke er fornøyde med?

✓ Hvilke tiltak kan vi iverksette overfor elever under og like over bekymringsgrensen?