**4. trinn**
**våren**

# Lærerveiledning regneferdigheter

**Bekymringsgrense:**

## 1. Hvor mye? Sett ring rundt riktig svar.

| | | | |
|---|---|---|---|
| 12 kr | 13 kr | 14 kr | 15 kr |

| | | | |
|---|---|---|---|
| 52 kr | 60 kr | 65 kr | 70 kr |

| | | | |
|---|---|---|---|
| 104 kr | 113 kr | 127 kr | 172 kr |

| | | | |
|---|---|---|---|
| 536 kr | 236 kr | 626 kr | 636 kr |

## 2. Tegn strek ned på riktig sted på tallinja.

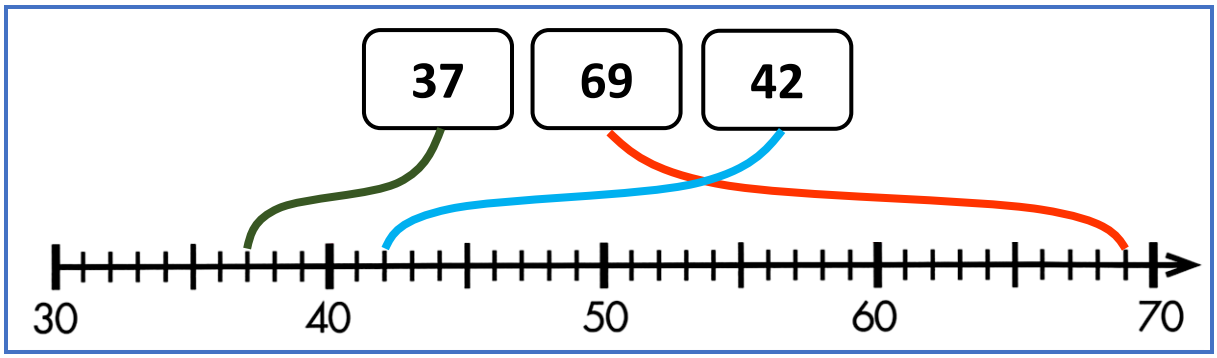


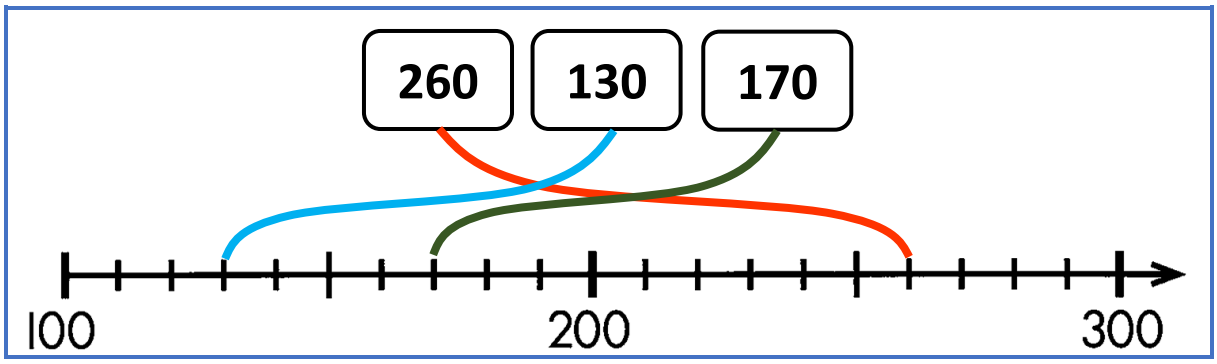

**3. Hvilket tall peker pila på?**

Svar: **0,8**

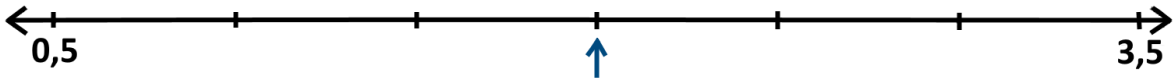


Svar: **2**

Svar: **125**

**4. Skriv som ett tall med tallsymboler.**

Sekstifire = **63**

Seks hundrere, åtte tiere og tre enere = **683**

Tre tusen og førtien = **3041**

Tolv hundrere og tre tiere = **1230**

**5. Nærmeste hundrer**

| | |
|---|---|
| 248 ≈ **200** | 162 ≈ **200** |
| 377 ≈ **400** | 1852 ≈ **1900** |

**6. Fortsett tallrekkene**

| | | | | | |
|---|---|---|---|---|---|
| 5 | 10 | 15 | **20** | **25** | **30** |
| 43 | 41 | 39 | **37** | **35** | **33** |
| 14 | 24 | 34 | **44** | **54** | **64** |
| 2,3 | 2,5 | 2,7 | **2,9** | **3,1** | **3,3** |

**7. Regn ut**

| | |
|---|---|
| 7 + **13** = 20 | 38 = 29 + **9** |
| 16 + 7 = **9** + 14 | 20 + 2 = **13** + 9 |
| 35 – **18** = 17 | 10 = 23 – **13** |
| 20 – 5 = 23 – **8** | 21 – 5 = **23** – 7 |
| 5 • 3 = **15** | 4 • 6 = **24** |
| 7 • 4 = **28** | 8 • 6 = **48** |
| 12 : 2 = **6** | 9 : 3 = **3** |
| 15 : 5 = **3** | 10 : 10 = **1** |

## 8. Regn ut

| | | | |
|---|---|---|---|
| | | | |
| | | 3 | 7 |
| + | 2 | 6 | 1 |
| = | **2** | **9** | **8** |

| | | | |
|---|---|---|---|
| | 1 | | |
| | 5 | 9 | 2 |
| + | 2 | 7 | 6 |
| = | **8** | **6** | **8** |

| | | | | |
|---|---|---|---|---|
| | 1 | 1 | 1 | |
| | 1 | 3 | 7 | 5 |
| + | 1 | 8 | 3 | 5 |
| = | **3** | **2** | **1** | **0** |

| | | | |
|---|---|---|---|
| | | | |
| | 4 | 7 | 7 |
| - | | 5 | 6 |
| = | **4** | **2** | **1** |

| | | | |
|---|---|---|---|
| | | | 10 |
| | 5 | ~~9~~ | 1 |
| - | 2 | 7 | 6 |
| = | **3** | **1** | **5** |

| | | | | |
|---|---|---|---|---|
| | | 10 | 10 | 10 |
| | ~~5~~ | 0 | 0 | 0 |
| - | | 7 | 4 | 7 |
| = | **4** | **2** | **5** | **3** |

## 9. Regn ut og skriv svaret

Ludvig har 50 kr.
Han kjøper kort som koster 9 kr per stk.

**Hvor mange kort kan han kjøpe?**

**Svar:** **5**

Et rektangel er 6 cm bredt og 4 cm langt.

**Hvor stort er arealet av rektangelet?**

**Svar:** **24 cm²**

På en konsert var det 3268 voksne og 1985 barn.

**Hvor mange var det på konserten?**

**Svar:** **5253**

Til utregning:

| | | | | |
|---|---|---|---|---|
| | | | | |
| | | | | |
| | | | | |

**10. Skriv to klokkeslett til hver klokke.**

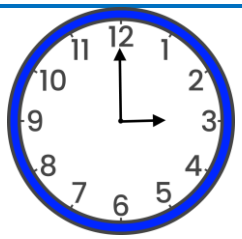

**03.00**

**15.00**

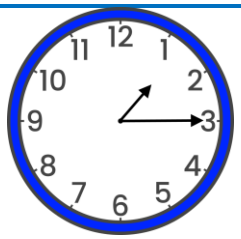

**01.15**

**13.15**

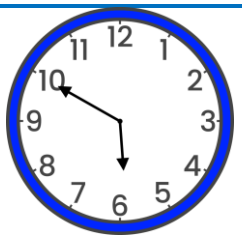

**05.50**

**17.50**

**11. Tegn på visere slik at de viser tidspunktet som står under**

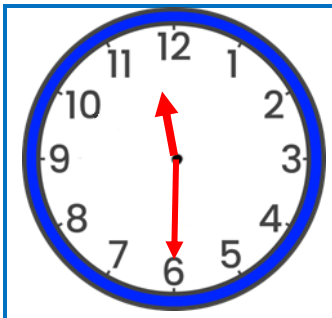

**11.30**

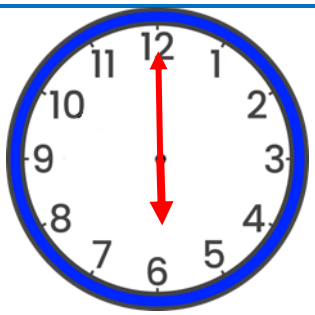

**18.00**

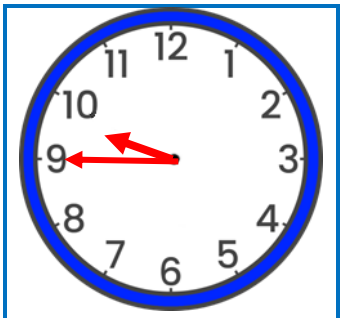

**21.45**

**12. Skriv som liter**

| | | |
|---|---|---|
| 20 dl = **2** *l* | 5 dl = **0,5** *l* | 112 dl = **11,2** *l* |

**13. Skriv som meter**

| | | |
|---|---|---|
| 200 cm = **2** *m* | 50 cm = **0,5** *m* | 250 mm = **0,25** *m* |

**14. Skriv som kilogram**

| | | |
|---|---|---|
| 4000 g = **4** *kg* | 12 hg = **1,2** *kg* | 375 g = **0,375** *kg* |

**15. Regn ut og skriv svaret**

En uke går Hanna 56 km på ski.
Uken etter går hun 7 km lengre.

**Hvor langt gikk hun til sammen de to ukene?**

**Svar:** 119

**16. Regn ut og skriv svarene.**

Diagrammet under viser alderen til tilskuerne som var på en kino.

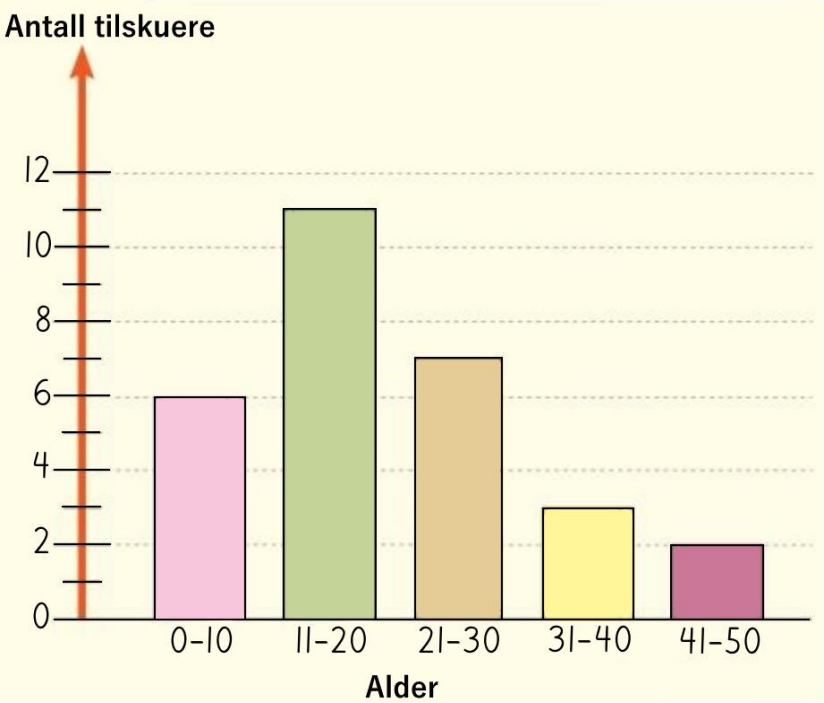


**Hvor mange flere tilskuere var på kinoen i alderen 11-20 enn i alderen 0-10?**

**Svar:** 5

**Hvor mange tilskuere var over 20 år?**

**Svar:** 12

Klasse: _____

| Oppg.nr. | Tema | Resultat | Prosent | Av totalt |
|---|---|---|---|---|
| 1 | Tall/mengde | | | 4 |
| 2 | Tallinje | | | 6 |
| 3 | Tallinje | | | 3 |
| 4 | Avrunding | | | 4 |
| 5 | Avrunding | | | 4 |
| 6 | Tallrekker | | | 4 |
| 7 | De fire regneartene | | | 16 |
| 8 | Oppstilte regnestykker | | | 6 |
| 9 | Tekstoppgaver | | | 3 |
| 10 | Klokka | | | 6 |
| 11 | Klokka | | | 3 |
| 12 | Omregning - liter | | | 3 |
| 13 | Omregning - meter | | | 3 |
| 14 | Omregning - kilogram | | | 3 |
| 15 | Tekstoppgave | | | 1 |
| 16 | Diagram | | | 2 |
| | | | | **71** |

**Sjekkliste etter prøven**

✓ se nærmere på resultatene til elever som skårer under eller like over bekymringsgrensen

✓ vurdere hva de klarer / ikke klarer på de enkelte prøvene/oppgavene

✓ se resultatene i sammenheng med annen informasjon om eleven, blant annet observasjoner gjort under prøven

✓ sørge for at elevene og foreldrene til elever som trenger ekstra oppfølging, får tilbakemelding om resultatene og informasjon om videre oppfølging

**Spørsmål til refleksjon og diskusjon**

✓ Er resultatet som forventet?

✓ Ser vi mønstre/tendenser i resultatene på trinnet?

✓ Har vi annen informasjon som bekrefter eller avkrefter resultatene fra kartleggingsprøven?

✓ Viser resultatene fra kartleggingsprøven at det er behov for ytterligere kartlegging?

✓ Hvilke konsekvenser får resultatene for trinnets videre arbeid med regning i alle fag?

✓ Hva kan vi gjøre for å forbedre de resultatene vi ikke er fornøyde med?

✓ Hvilke tiltak kan vi iverksette overfor elever under og like over bekymringsgrensen?