6. trinn
våren

Lærerveiledning regneferdigheter

Bekymringsgrense:

1. Hvor mye? Sett ring rundt riktig svar.

104 kr	113 kr	117 kr	171 kr

1326 kr	1136 kr	1126 kr	1026 kr

2. Skriv som ett tall med tallsymboler

Sekstitre = **63**

Seks hundrere, ni tiere og fire enere = **694**

Tre tusen og førtito = **3042**

Fjorten hundrere og tre tiere = **1430**

3. Rund av til nærmeste hundrer.

849 ≈ **800**	1452 ≈ **1500**
1736 ≈ **1700**	2956 ≈ **3000**

4. Fortsett tallrekkene

42	36	30	**24**	**18**	**12**

14	21	28	**35**	**42**	**49**

2,5	2,9	3,3	**3,7**	**4,1**	**4,5**

5. **Tegn strek ned på riktig sted på tallinja.**

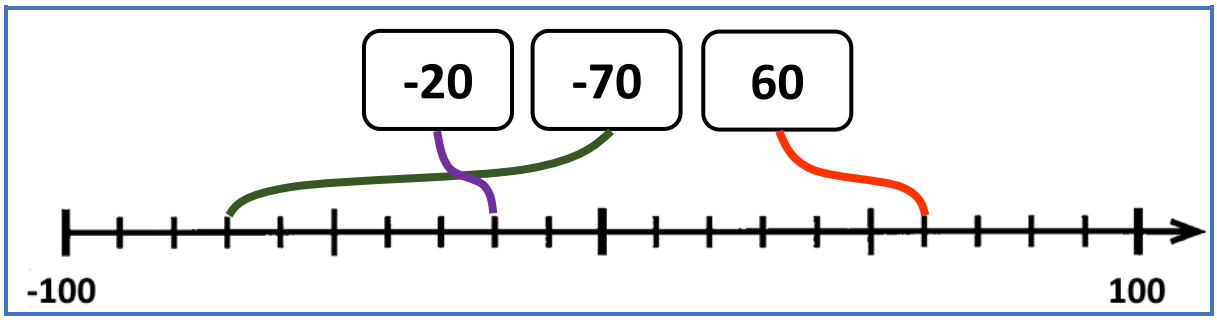

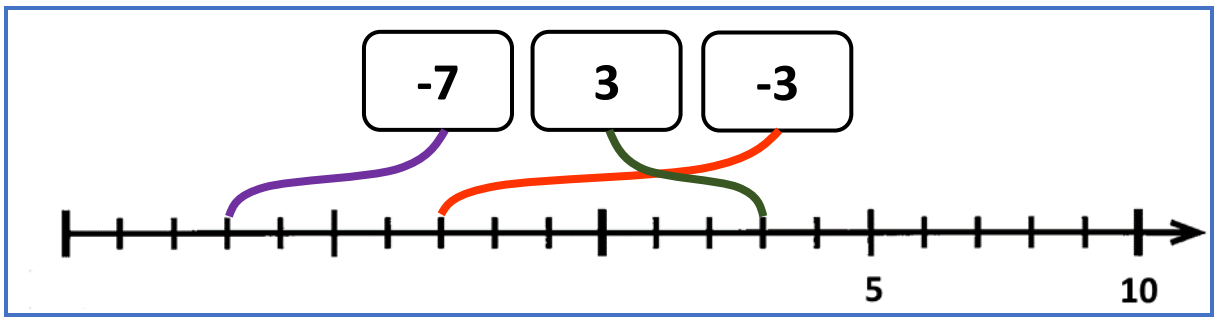

6. **Hvilket tall peker pila på?**

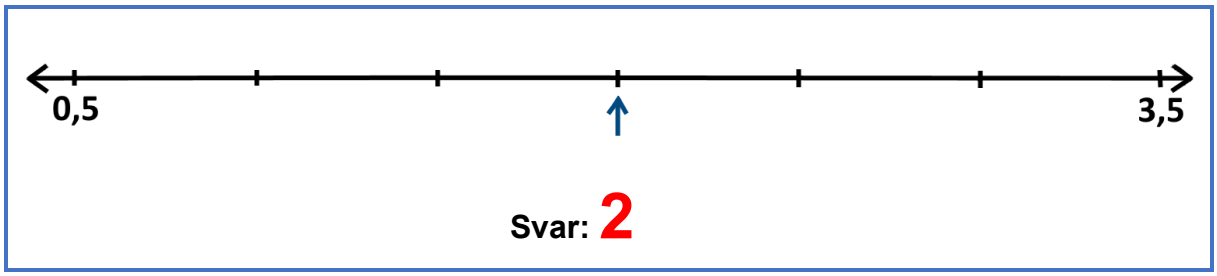

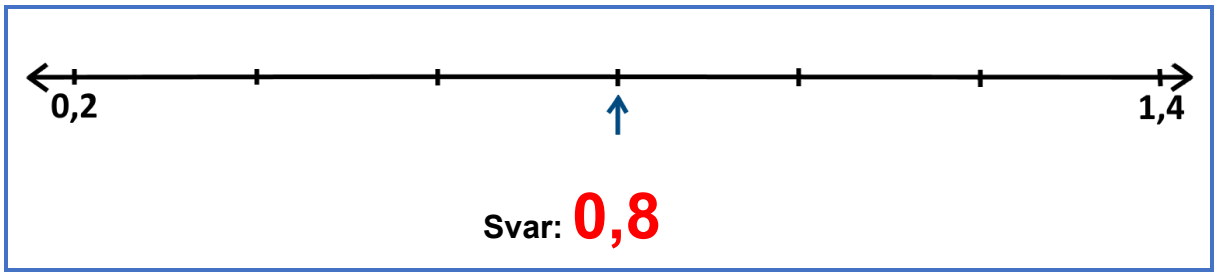

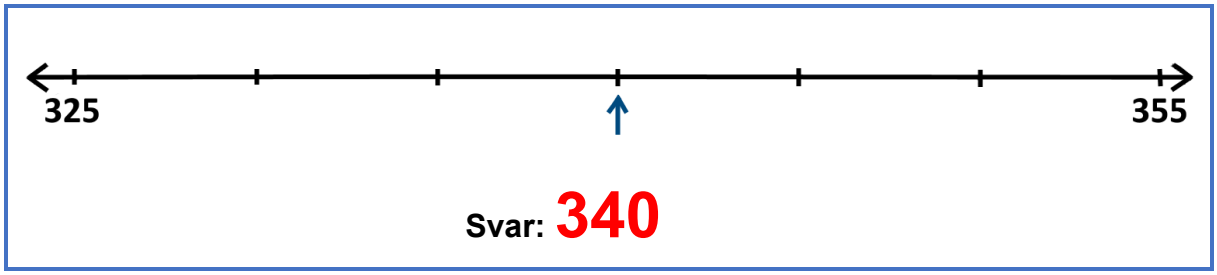

7. Regn ut

12 + 7 = **19**	19 + 12 = **31**
26 + 7 = **21** + 12	23 + 2 = **16** + 9
34 – 6 = **28**	340 – 27 = **313**
20 – 5 = 23 – **8**	23 – 5 = **25** – 7
6 • 7 = **42**	9 • 6 = **54**
12 • 8 = **96**	11 • 6 = **66**
15 : 5 = **3**	100 : 20 = **5**
36 : 3 = **12**	5 : 5 = **1**

8. Regn ut og skriv svaret

Rune har ei juicepresse. Av 2 kg appelsiner får han 1 liter juice. Han har kjøpt 6 kg appelsiner

Hvor mange liter juice får Rune av disse appelsinene? **Svar:** **3 liter**

Kaniner bør få 20 g pellets per dag for hvert kilogram de veier. Kaninen til Tuva veier 1,5 kg.

Hvor mange gram pellets bør kaninen til Tuva få per dag? **Svar:** **30 g**

9. Regn ut

		2	7
+	1	6	0
=	**1**	**8**	**7**

	1	1	
	5	9	5
+	2	6	6
=	**8**	**6**	**1**

	1	1	1	
	1	3	7	5
+	1	8	2	5
=	**3**	**2**	**0**	**0**

	2	8	7
-		6	5
=	**2**	**2**	**2**

			10
	5	~~9~~	1
-	2	7	6
=	**3**	**1**	**5**

		10	10	10
	~~3~~	0	0	0
-		6	4	7
=	**2**	**3**	**5**	**3**

10. Regn ut

Kari skal bruke en oppskrift til å lage ei kake.

Bunn

150 g smør
3 store egg
4 dl sukker
3 ts vaniljesukker
2 ¾ dl hvetemel

Fyll

120 g kremost
2 ½ dl peanøttsmør
1 ½ dl melis
½ ts vaniljesukker
2 dl kremfløte

Glasur

50 g smør
120 g kremost
1 ts vaniljeekstrakt
3 ss kakao
4 ½ dl melis

Hvor mye melis trenger hun til sammen?

Svar: 6 dl

11. Hvor stor del er farget?



Svar: $\frac{1}{4}$

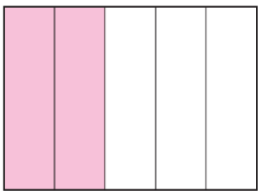

Svar: $\frac{2}{5}$

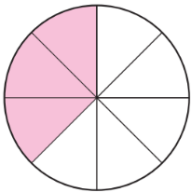

Svar: $\frac{3}{8}$

12. Skriv to klokkeslett til hver klokke.

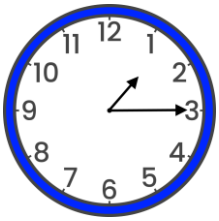

01.15

13.15

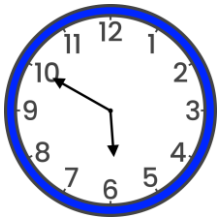

05.50

17.50

13. Lag et rektangel med areal på 12 cm²

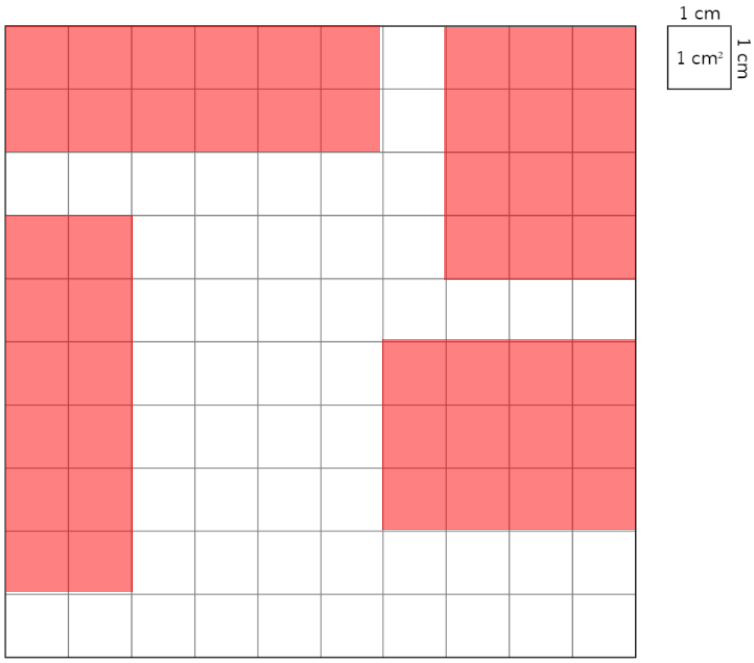

14. Tegn strek ned på riktig sted på tallinja.

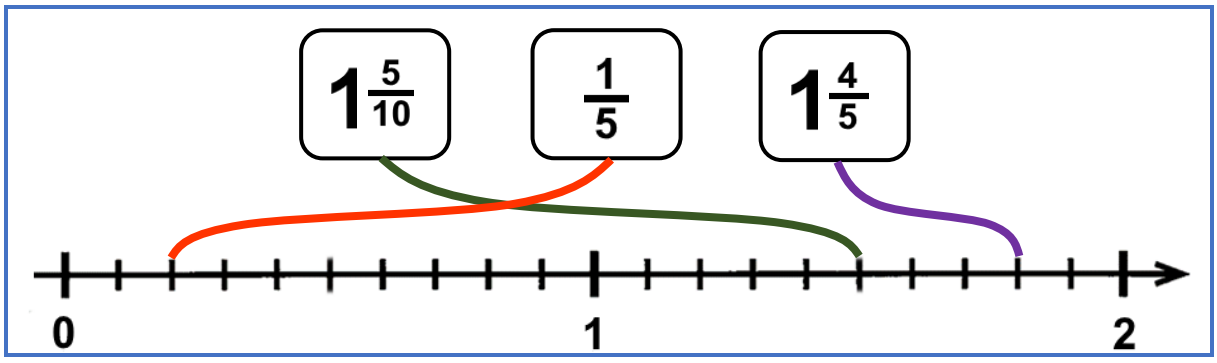

15. Løs oppgaven

		Tid (t, min)					
		Bergen	Kristiansand	Oslo	Stavanger	Tromsø	Trondheim
Avstand (km)	Bergen		8 t 22 min	7 t 54 min	5 t 4 min	29 t 1 min	10 t 50 min
	Kristiansand	485 km		4 t 58 min	3 t 42 min	30 t 39 min	12 t 29 min
	Oslo	484 km	327 km		8 t 18 min	25 t 44 min	7 t 33 min
	Stavanger	211 km	234 km	540 km		32 t 24 min	14 t 13 min
	Tromsø	1812 km	1975 km	1648 km	1996 km		18 t 17 min
	Trondheim	660 km	823 km	497 km	845 km	1155 km	

Harald skal kjøre fra Trondheim til Bergen.
Line skal kjøre fra Trondheim til Oslo

Hvor mange flere kilometer må Harald kjøre enn Line?

Svar: 163 km

16. Løs oppgavene

Fire venner plukket jordbær. Tabellen til høyre viser hvor mange bær hver av dem plukket i løpet av fem dager.

Diagrammet under viser det samme som tabellen.

Navn	Man	Tir	Ons	Tor	Fre
Isak	15	15	15	15	15
Kine	18	12	12	18	20
Linn	14	11	27	13	15
Noah	12	8	8	12	10

Fyll inn navn i de grønne rutene under riktig søyle.

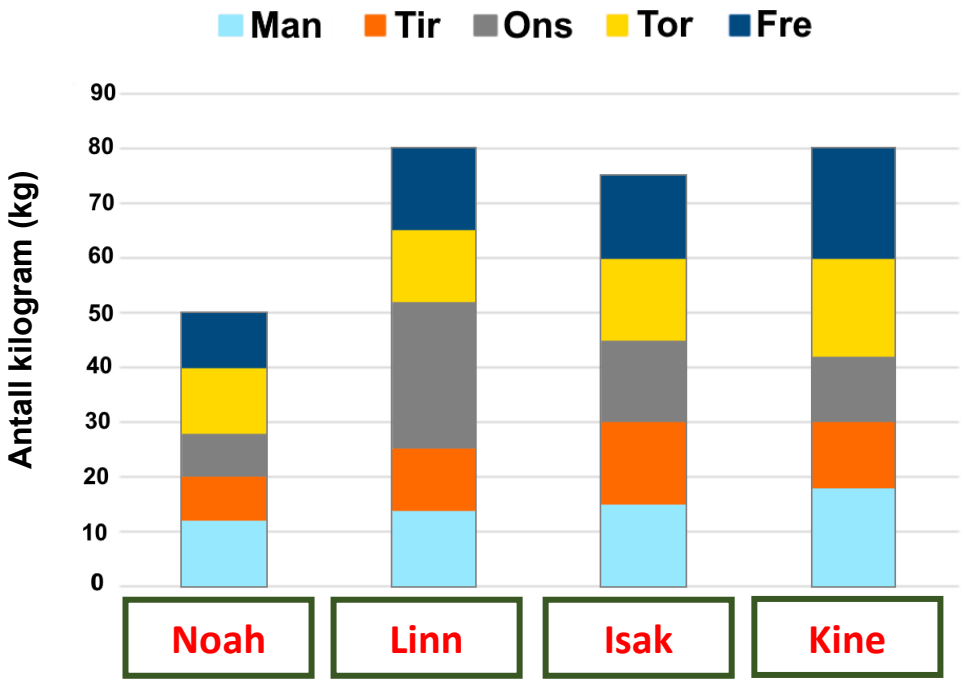

Klasse: _____

Oppg.nr.	Tema	Resultat	Prosent	Av totalt
1	Tall/mengde			2
2	Tall med bokstaver			4
3	Avrunding			4
4	Tallrekke			3
5	Tallinje			6
6	Tallinje			3
7	De fire regneartene			16
8	Tekstoppgave			2
9	Utregning			6
10	Tekstoppgave			1
11	Brøk			3
12	Klokka			4
13	Areal - rektangel			1
14	Tabell			1
15	Diagram			1
16	Diagram			4
				61

Sjekkliste etter prøven

✓ se nærmere på resultatene til elever som skårer under eller like over bekymringsgrensen

✓ vurdere hva de klarer / ikke klarer på de enkelte prøvene/oppgavene

✓ se resultatene i sammenheng med annen informasjon om eleven, blant annet observasjoner gjort under prøven

✓ sørge for at elevene og foreldrene til elever som trenger ekstra oppfølging, får tilbakemelding om resultatene og informasjon om videre oppfølging

Spørsmål til refleksjon og diskusjon

✓ Er resultatet som forventet?

✓ Ser vi mønstre/tendenser i resultatene på trinnet?

✓ Har vi annen informasjon som bekrefter eller avkrefter resultatene fra kartleggingsprøven?

✓ Viser resultatene fra kartleggingsprøven at det er behov for ytterligere kartlegging?

✓ Hvilke konsekvenser får resultatene for trinnets videre arbeid med regning i alle fag?

✓ Hva kan vi gjøre for å forbedre de resultatene vi ikke er fornøyde med?

✓ Hvilke tiltak kan vi iverksette overfor elever under og like over bekymringsgrensen?