**7. trinn**
**høsten**

# Lærerveiledning regneferdigheter

**Bekymringsgrense: 33/61**

## 1. Finn tallet

| | |
|---|---|
| Skriv tallet som er 7000 større enn 31 882 | **38 882** |
| Skriv tallet som er 200 større enn 1882 | **2082** |
| Skriv tallet som er 40 millioner mindre enn 85 775 539 | **45 775 539** |
| Skriv tallet som er 4000 mindre enn 9 079 580 | **9 075 580** |

## 2. Skriv tallene med siffer.

Fem tusen, tre hundre og førtifire = **5 344**

Tre millioner, tretten tusen og atten = **3 013 018**

Trettiåtte tusen, åtte hundre og sekstitre = **38 863**

## 3. Rund av til nærmeste hundrer.

| | |
|---|---|
| 349 ≈ **300** | 852 ≈ **900** |
| | |
| 1756 ≈ **1800** | 1236 ≈ **1200** |

## 4. Rund av til nærmeste tidel. Sett kryss på riktig svar.

| | | | | |
|---|---|---|---|---|
| 25,864 ≈ | 25,86 | 25,87 | 25,8 | ~~25,9~~ |
| 70,473 ≈ | ~~70,5~~ | 70,47 | 70,4 | 70,48 |
| 16,757 ≈ | 16,7 | ~~16,8~~ | 16,76 | 16,75 |

5. **Tegn strek ned på riktig sted på tallinja.**

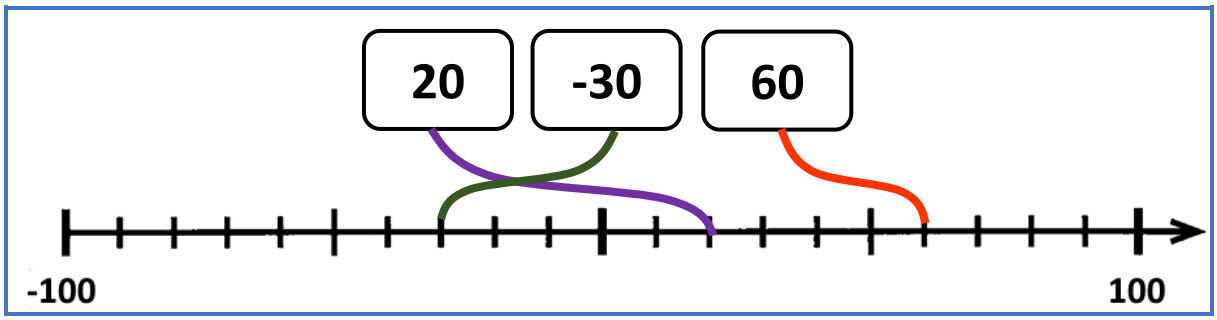


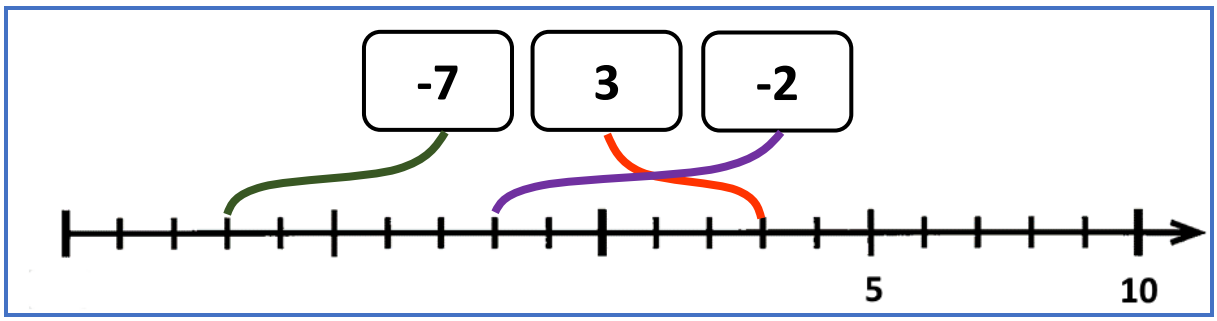


6. **Hvilket tall peker pila på?**

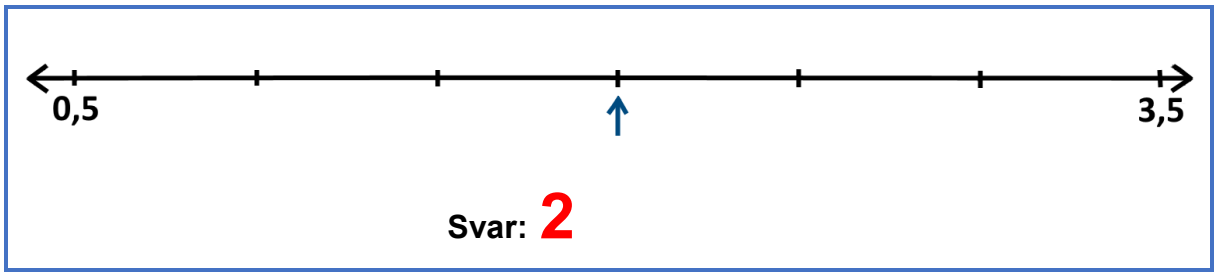


Svar: **2**

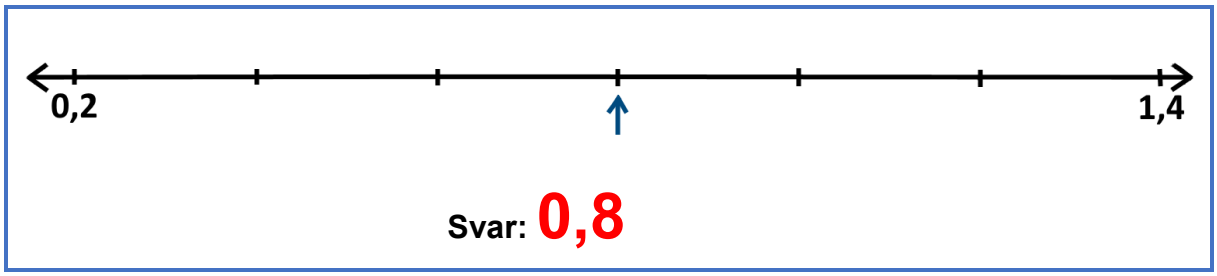


Svar: **0,8**

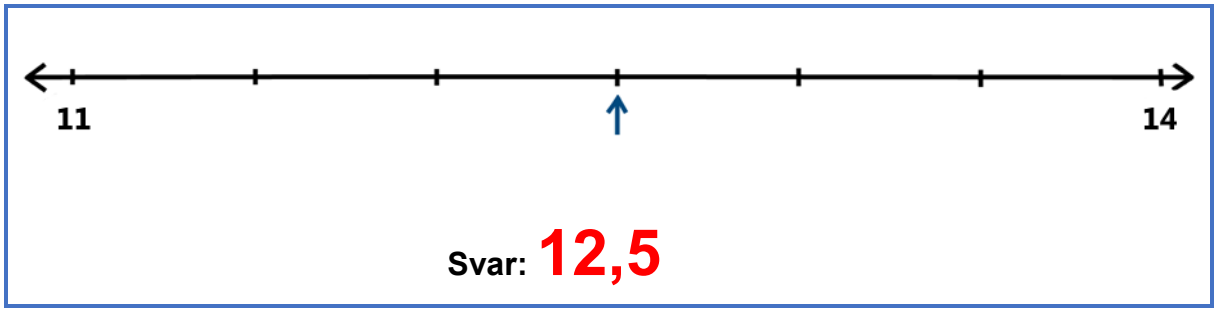


Svar: **12,5**

## 7. Fyll ut de tomme feltene slik at regnestykkene blir riktig

| | | | |
|---|---|---|---|
| | | | |
| | 2 | 8 | 7 |
| + | 2 | 6 | 0 |
| = | 5 | 4 | 7 |

| | | | | |
|---|---|---|---|---|
| | | | | |
| | 2 | 4 | 2 | 3 |
| - | 1 | 4 | 1 | 3 |
| = | 1 | 0 | 1 | 0 |

## 8. Regn ut

| | |
|---|---|
| 7 • 8 = **56** | 9 • 6 = **54** |
| 12 • 8 = **96** | 11 • 3 = **33** |
| 15 : 5 = **3** | 100 : 25 = **4** |
| 360 : 3 = **120** | 2 : 4 = **0,5** |

## 9. Regn ut og skriv svarene

Langbakken skole arrangerte friidrettsdag. Espen og Noah hoppet stille lengde.
Espen hoppet 1 m og 19 cm, og Noah hoppet 95 cm.

**Hvor mange centimeter lengre hoppet Espen enn Noah?**

**Svar:** **24 cm**

Mikkel står i kø for å kjøre berg-og-dal-banen *ThunderCoaster* på Tusenfryd. Mikkel ser at hvert togsett består av fire vogner med plass til seks personer i hver vogn.

**Hvor mange personer er det plass til i hvert togsett?**

**Svar:** **24**

**10. Speil figuren om det grå linjestykket**

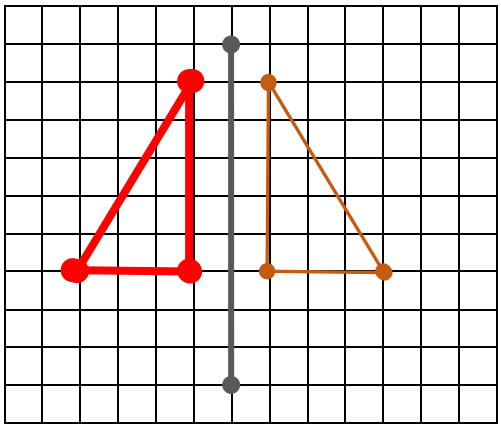

**11. Fargelegg fire tolvdeler av rektangelet**

**12. Hva heter figurene?**

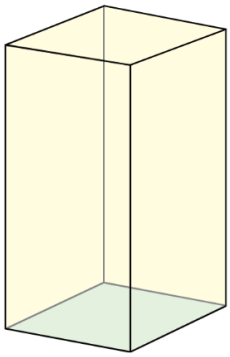

Prisme

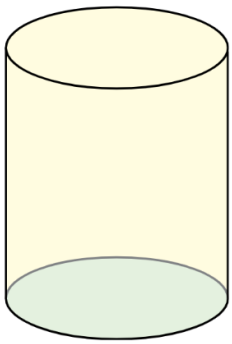

Sylinder

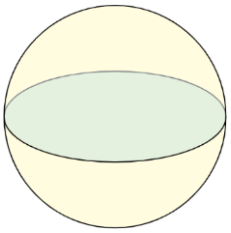

Kule

**13. Skriv to klokkeslett til hver klokke.**

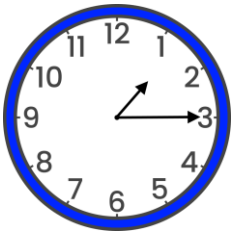

01.15

13.15

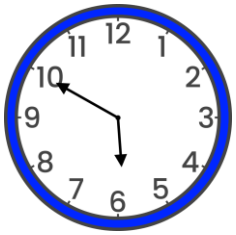

05.50

17.50

**14. Lag et rektangel med areal på 12 cm²**

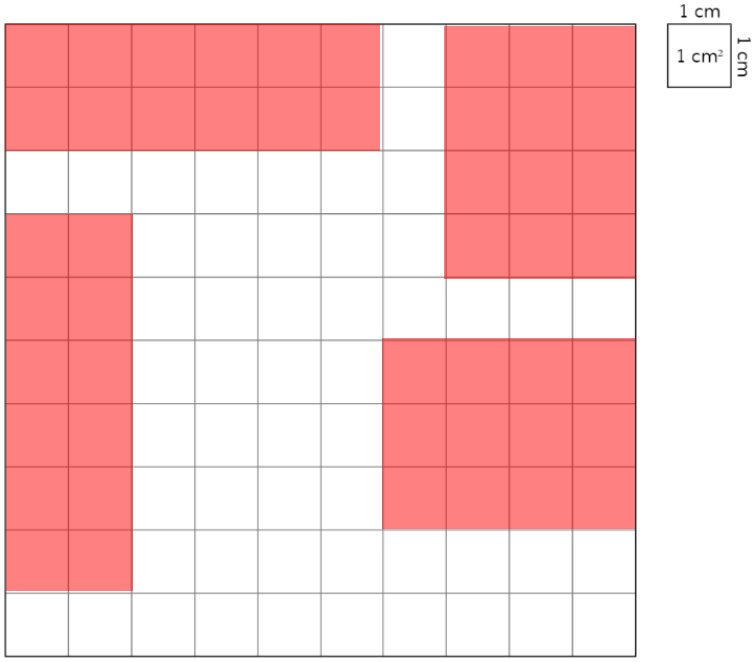


**15. Gjør om til meter**

| | |
|---|---|
| 101 cm = **1,01** m | 32 cm = **0,32** m |
| 1,1 km = **1100** m | 230mm = **0,23** m |

**16. Gjør om til liter**

| | |
|---|---|
| 17 dl = **1,7** l | 1,1 dl = **0,11** l |
| 120 cl = **1,2** l | 300 ml = **0,3** l |

## 17. Løs oppgaven

Diagrammet viser befolkningsveksten i fire kommuner i 2018 og 2019.

**I hvilken kommune har befolkningsveksten minket?**

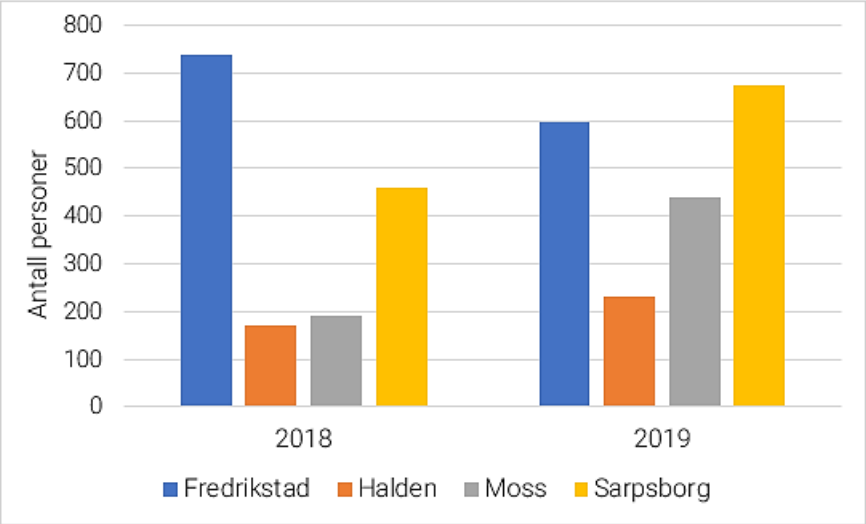


**Svar: Fredrikstad**

## 18. Løs oppgaven

Diagrammet under viser registrert fangst av fisk i noen elver i 2017. I noen elver er fangsten mer enn 30 000 kg.

**Hvilke elver gjelder dette?**

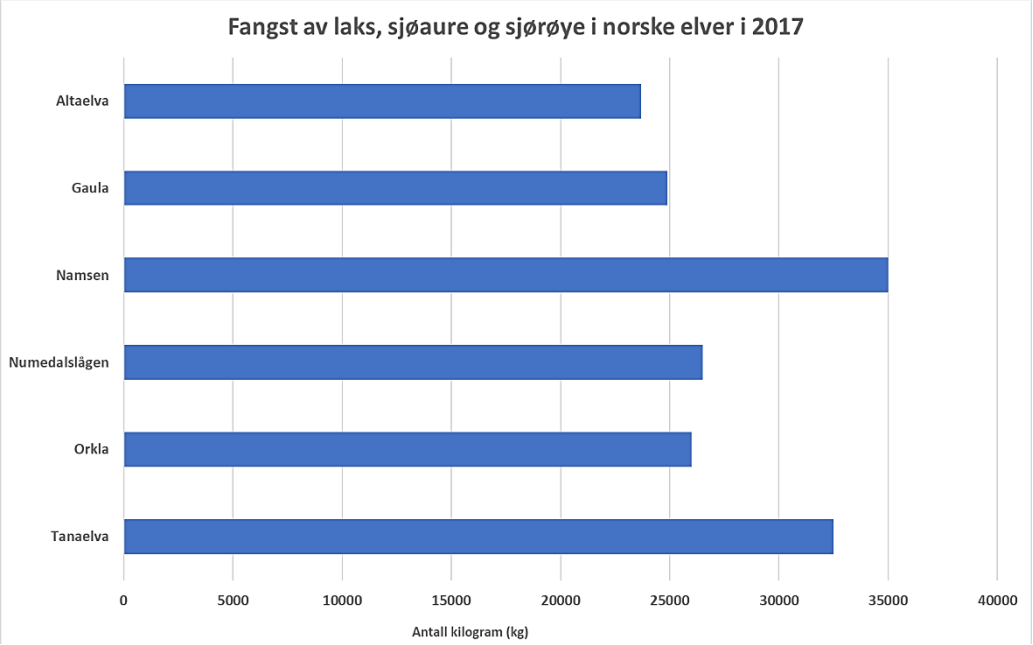


**Svar: Namsen og Tanaelva**

Elev: _____

| Oppg.nr. | Tema | Resultat | Av totalt |
|---|---|---|---|
| 1 | Tall/mengde | | 4 |
| 2 | Tall med bokstaver | | 3 |
| 3 | Avrunding | | 4 |
| 4 | Avrunding | | 3 |
| 5 | Tallinje | | 6 |
| 6 | Tallinje | | 3 |
| 7 | Utregning | | 7 |
| 8 | Multiplikasjon/divisjon | | 8 |
| 9 | Tekstoppgave | | 2 |
| 10 | Speiling | | 1 |
| 11 | Brøk | | 1 |
| 12 | Geometriske figurer | | 3 |
| 13 | Klokka | | 4 |
| 14 | Areal | | 1 |
| 15 | Omgjøring-meter | | 4 |
| 16 | Omgjøring-liter | | 4 |
| 17 | Diagram | | 1 |
| 18 | Diagram | | 2 |
| | | | **61** |

**Sjekkliste etter prøven**

✓ se nærmere på resultatene til elever som skårer under eller like over bekymringsgrensen

✓ vurdere hva de klarer / ikke klarer på de enkelte prøvene/oppgavene

✓ se resultatene i sammenheng med annen informasjon om eleven, blant annet observasjoner gjort under prøven

✓ sørge for at elevene og foreldrene til elever som trenger ekstra oppfølging, får tilbakemelding om resultatene og informasjon om videre oppfølging

**Spørsmål til refleksjon og diskusjon**

✓ Er resultatet som forventet?

✓ Ser vi mønstre/tendenser i resultatene på trinnet?

✓ Har vi annen informasjon som bekrefter eller avkrefter resultatene fra kartleggingsprøven?

✓ Viser resultatene fra kartleggingsprøven at det er behov for ytterligere kartlegging?

✓ Hvilke konsekvenser får resultatene for trinnets videre arbeid med regning i alle fag?

✓ Hva kan vi gjøre for å forbedre de resultatene vi ikke er fornøyde med?

✓ Hvilke tiltak kan vi iverksette overfor elever under og like over bekymringsgrensen?