4. trinn
høsten

Kartlegging av regneferdigheter

Elev:_____

Klasse:____

År:_____

Kontaktlærer:_____

1. Hvor mye? Sett ring rundt riktig svar.

12 kr	13 kr	14 kr	15 kr

52 kr	60 kr	65 kr	70 kr

104 kr	113 kr	117 kr	171 kr

176 kr	226 kr	626 kr	636 kr

2. Tegn strek ned på riktig sted på tallinja.

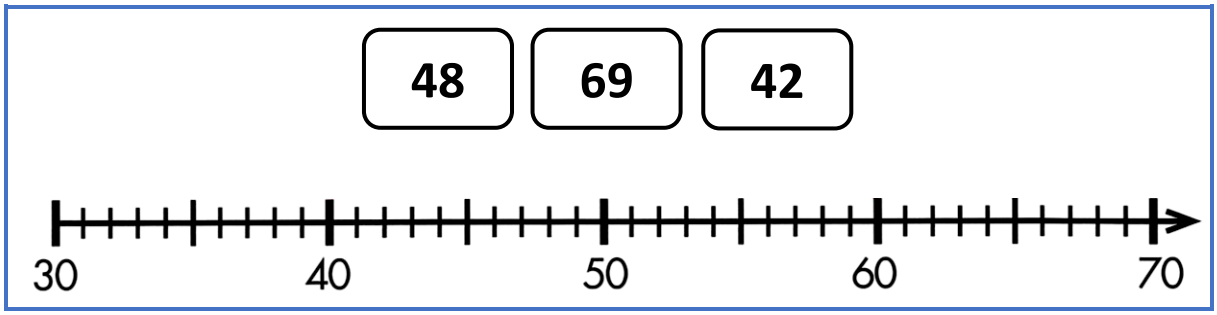

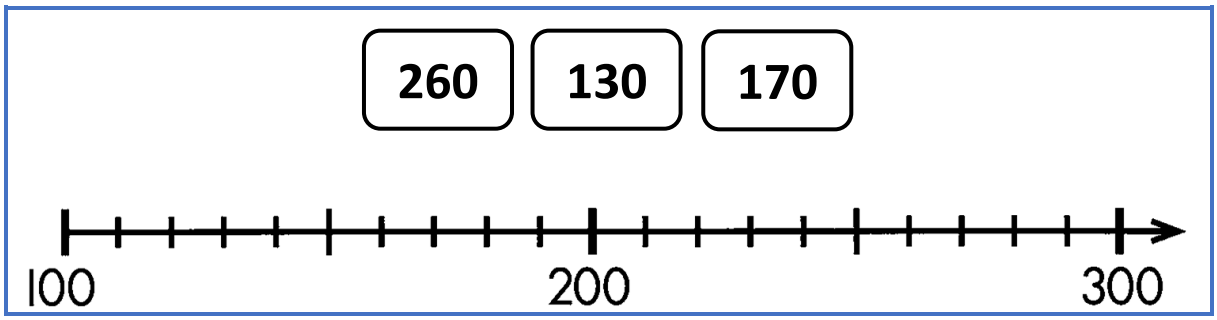

3. Hvilket tall peker pila på?

Svar: _____

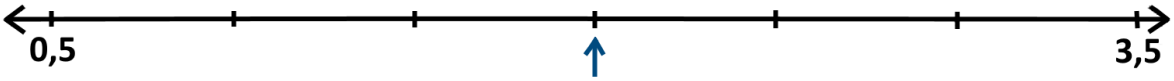

Svar: _____

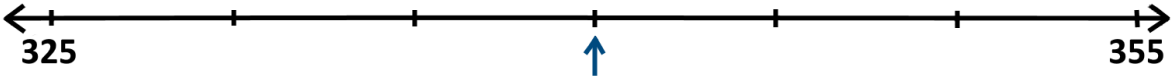

Svar: _____

4. Nærmeste hundrer

120 ≈ _____	172 ≈ _____
377 ≈ _____	852 ≈ _____

5. Fortsett tallrekkene

5	10	15			
43	42	41			
14	24	34			
15	17	19			

6. Regn ut

12 + 5 = ____	19 + 12 = ____
35 + 23 = ____	39 + 19 = ____
18 – 6 = ____	20 – 7 = ____
145 – 87 = ____	350 – 132 = ____
2 • 3 = ____	3 • 6 = ____
7 • 2 = ____	8 • 3 = ____
4 : 2 = ____	9 : 3 = ____
10 : 5 = ____	10 : 10 = ____

7. Regn ut

		2	7
+	1	6	0
=			

	5	9	1
+	2	7	6
=			

	1	3	7	5
+	1	8	3	5
=				

	2	8	7
-		6	5
=			

	5	9	1
-	2	7	6
=			

	4	0	0	0
-		8	3	5
=				

8. Regn ut og skriv svaret

Silje har 1638 kr i banken.
Hun vil ta ut så mye som mulig av pengene i hundrelapper.

Hvor mange hundrelapper vil Silje få? **Svar:** _____

Hunden til Petter fikk tre valper.
Petter skal selge hver valp for 9000 kr.

Hvor mange kroner vil han få for alle valpene? **Svar:** _____

Anne har 418 kr. Hun kjøper en is til 39 kr.

Hvor mange kroner har Anne igjen nå? **Svar:** _____

Til utregning:

9. Skriv to klokkeslett til hver klokke.

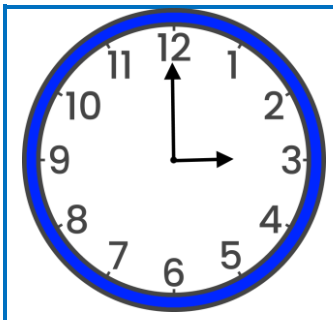

_____._____

_____._____

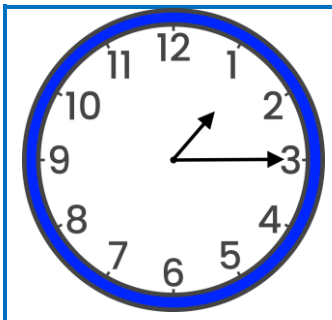

_____._____

_____._____

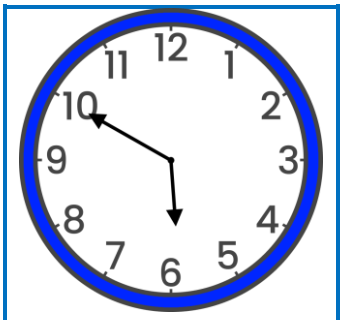

_____._____

_____._____

10. Hvilken speiling er riktig? Sett kryss på riktig speiling.

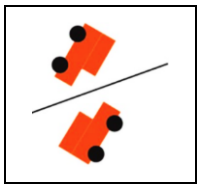

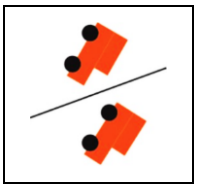

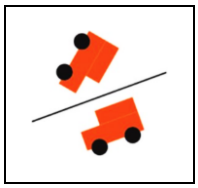

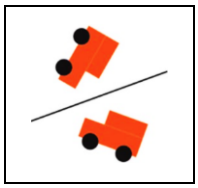

11. Skriv som liter

20 dl = _____/	4 dl = _____/	105 dl = _____/

12. Skriv som meter

100 cm = _____m	60 cm = _____m

13. Skriv som kilogram

2000 g = _____kg	12 hg = _____kg

14. Regn ut og skriv svaret

Tabellen viser den danske tellemåten.

Dansk tellemåte	Utregning
Tres	3 • 20
Firs	4 • 20
Fems	5 • 20
Halvtreds	3 • 20 – 10
Halvfjerds	4 • 20 – 10
Halvfems	5 • 20 – 10

Hvor mye er halvfjerds? **Svar: _____**

15. Finn svaret

Diagrammet under viser lengden til de lengste elvene i Europa.

Hvor mange elver er lengre enn 2100 km?

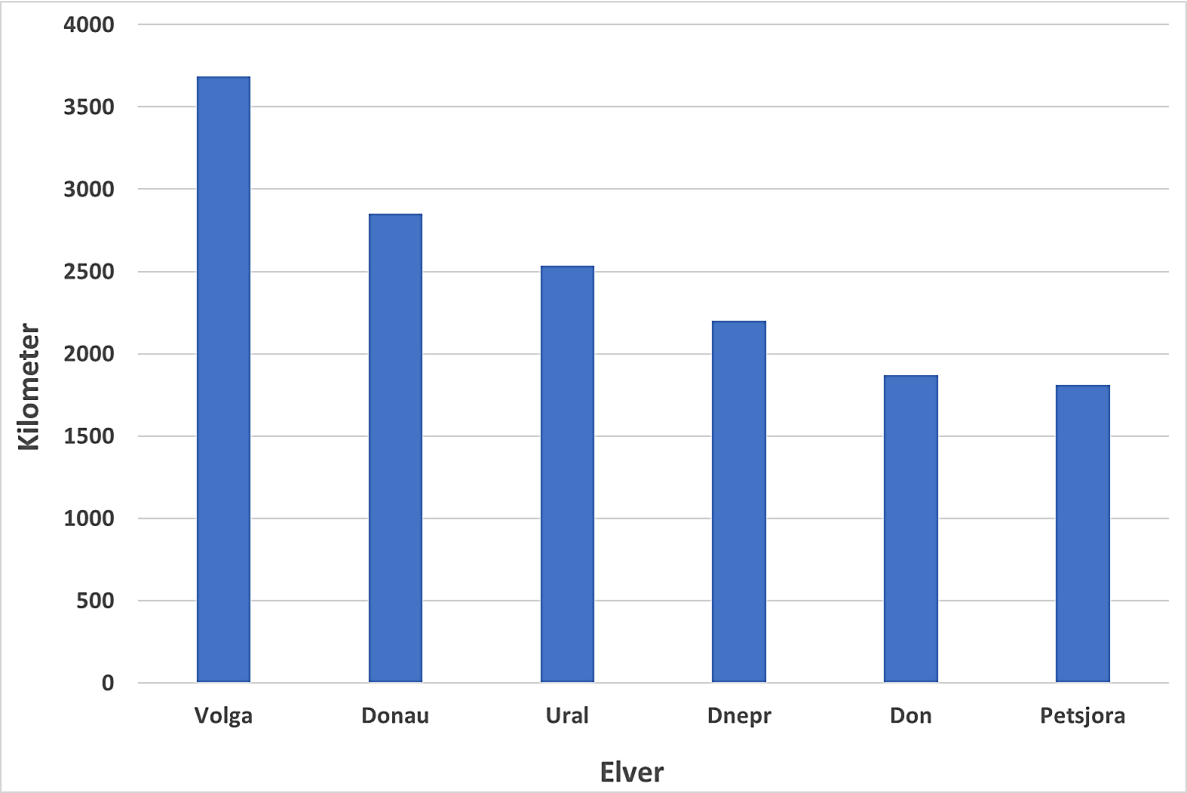

Svar: _____