5. trinn
høsten

Kartlegging av regneferdigheter

Elev:_____

Klasse:____

År:_____

Kontaktlærer:_____

1. Hvor mye? Sett ring rundt riktig svar.

104 kr	113 kr	117 kr	171 kr

176 kr	226 kr	626 kr	636 kr

2. Skriv tallene med siffer.

To hundre og førtifire = _____

Tre tusen, fire hundre og atten = _____

Fire hundre og tre = _____

3. Rund av til nærmeste hundrer.

130 ≈ ____	150 ≈ ____
349 ≈ ____	1852 ≈ ____

4. Rund av til nærmeste tidel. Sett kryss på riktig svar.

25,86 ≈	25,86	25,87	25,8	25,9
70,47 ≈	70,5	70,47	70,4	70,48
16,75 ≈	16,7	16,8	16,76	16,75

5. **Tegn strek ned på riktig sted på tallinja.**

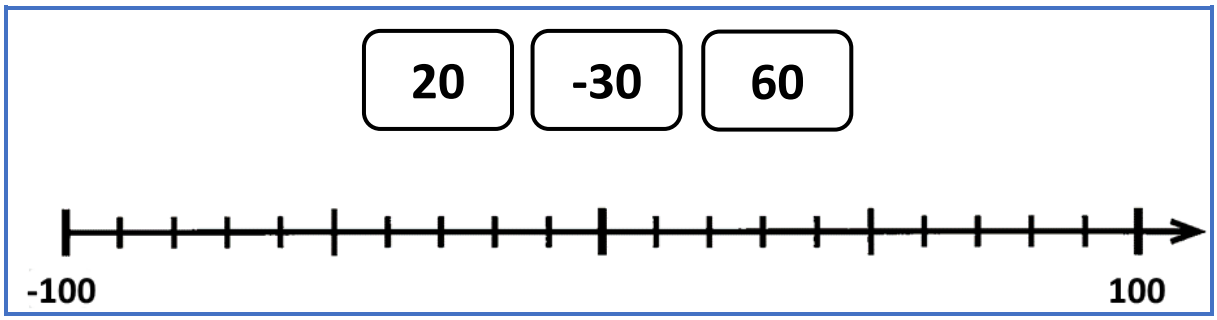

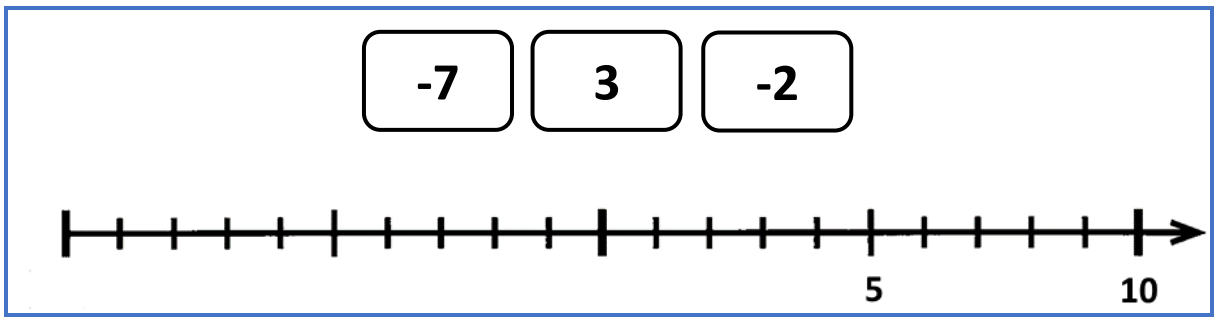

6. **Hvilket tall peker pila på?**

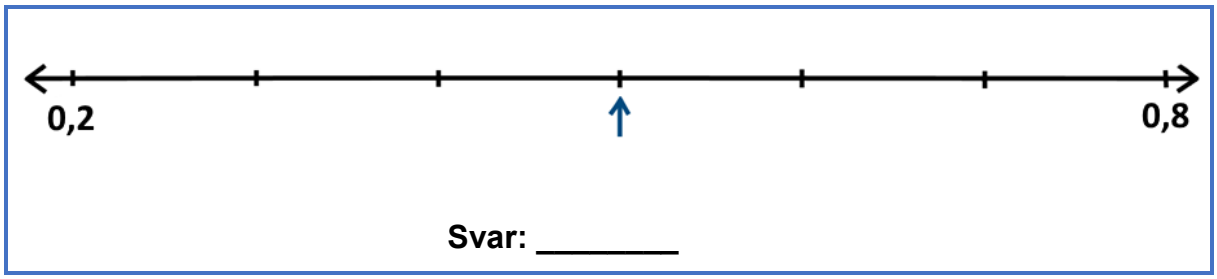

Svar: _____

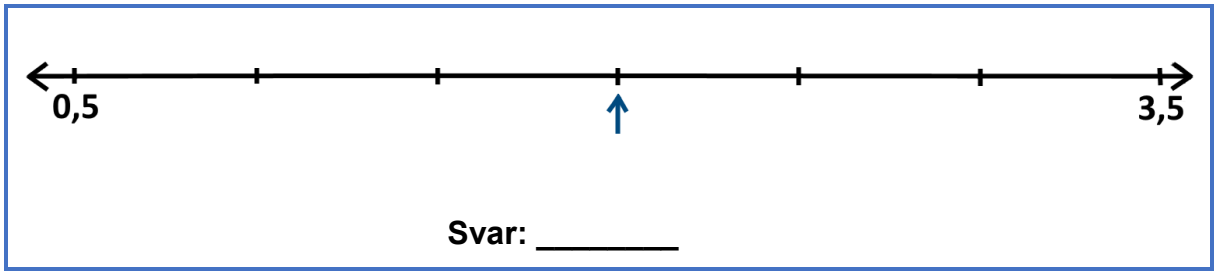

Svar: _____

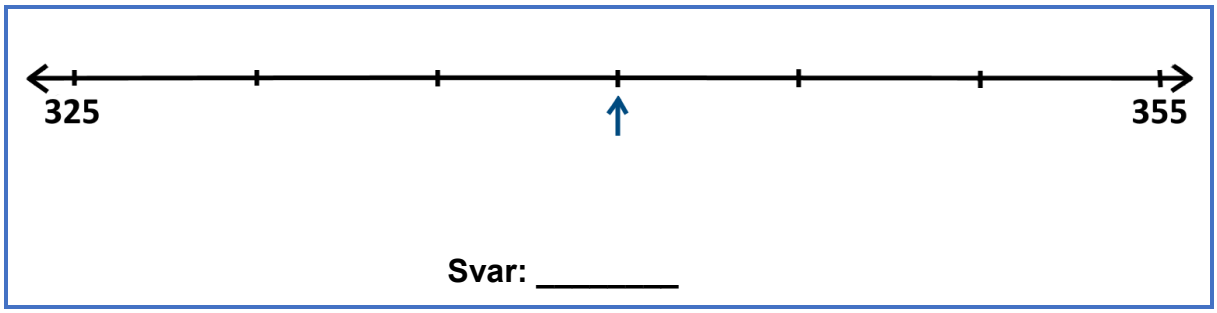

Svar: _____

7. Regn ut

12 + 5 = ____	19 + 12 = ____
375 + 23 = ____	379 + 59 = ____
34 – 6 = ____	340 – 27 = ____
8 – 15 = ____	220 – 132 = ____
6 • 4 = ____	9 • 6 = ____
12 • 8 = ____	11 • 3 = ____
15 : 5 = ____	100 : 25 = ____
36 : 3 = ____	2 : 4 = ____

8. Regn ut og skriv svaret

Langbakken skole arrangerte friidrettsdag. Espen og Noah hoppet stille lengde.
Espen hoppet 1 m og 20 cm, og Noah hoppet 95 cm.

Svar: _____

Hvor mange centimeter lengre hoppet Espen enn Noah?

En lastebileier har seks store lastebiler.
Her lastebil har 12 hjul.

Hvor mange hjul er det til sammen på lastebilene?

Svar: _____

9. Skriv som liter

20 dl = _____ l	4 dl = _____ l	105 dl = _____ l

10. Hvilken speiling er riktig? Sett kryss på riktig speiling.

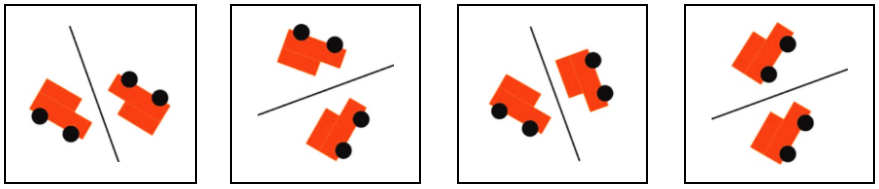

11. Hvilken sirkel er ⅓ fargelagt? Sett kryss på riktig sirkel.

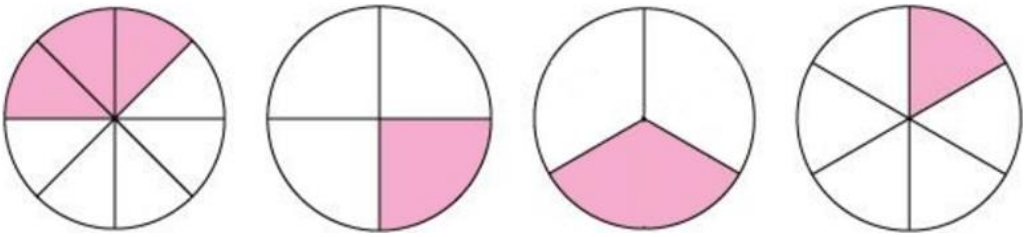

12. Hva heter figurene?

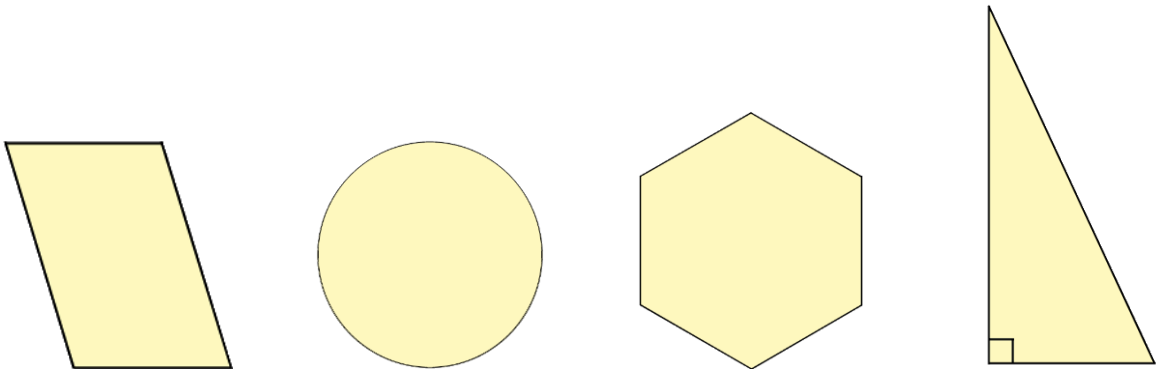

_____ _____ _____ _____

13. Lag et rektangel med areal på 12 cm^2

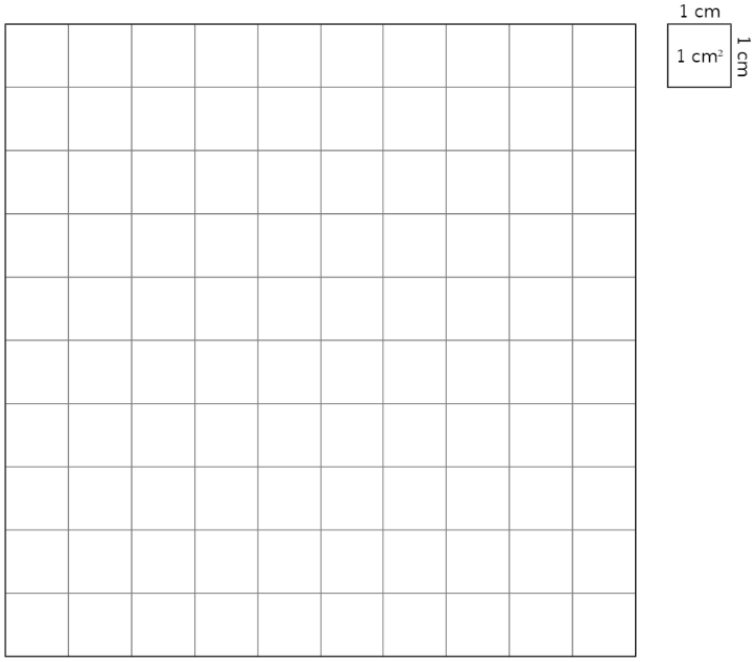

14. Skriv to klokkeslett til hver klokke.

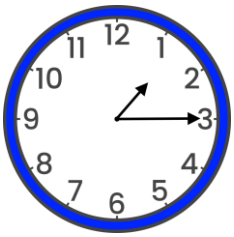

_____._____

_____.

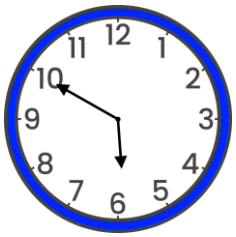

_____._____

_____.

15. Regn ut

	2	8	7
+		6	0
=			

	5	9	7
-	2	7	6
=			

	4	8	5	7
-		8	3	5
=				

16. Løs oppgaven

Fire jenter noterte hvor mange sider de hadde lest hver dag i fem dager. Diagrammet viser resultatet.

Hvem hadde lest flest sider på tirsdag?

Svar: _____

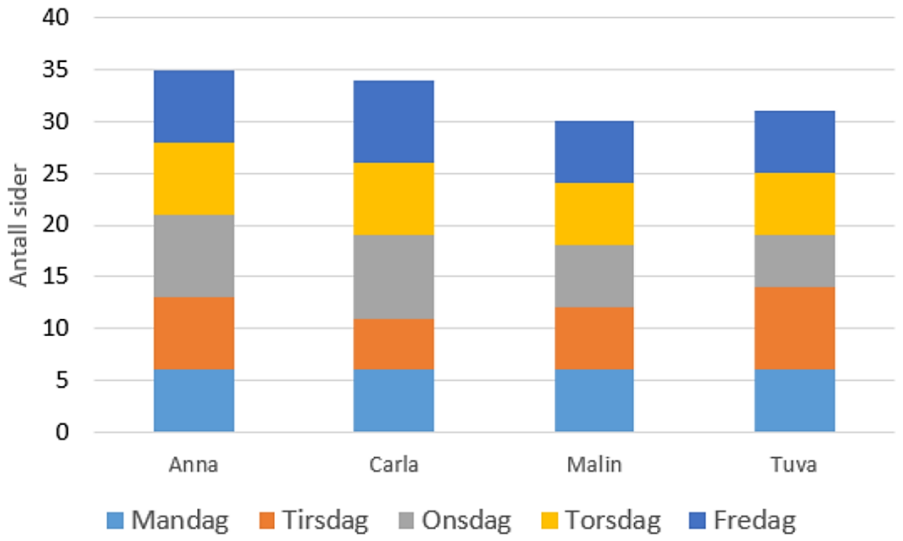

17. Løs oppgaven

Petter og familien besøker Frammuseet. I familien hans er det to voksne og tre barn. De ser at det blir billigere å kjøpe en familiebillett enn å kjøpe enkeltbilletter til voksne og barn.

Besøkende	Pris
Voksne	120 kr
Barn og studenter	50 kr
Pensjonister	90 kr
Familier (2 voksne og 3 barn)	240 kr
Skoleelever i følge med en lærer	Gratis

Hvor mye billigere blir en familiebillett?

Til utregning:

Svar: _____