6. trinn
høsten

Kartlegging av regneferdigheter

Elev:_____

Klasse:____

År:_____

Kontaktlærer:_____

1. Hvor mye? Sett ring rundt riktig svar.



104 kr	113 kr	117 kr	171 kr

176 kr	226 kr	626 kr	636 kr

2. Skriv tallene med siffer.

Tre tusen, to hundre og førtifire = _____

Tretten tusen og atten = _____

Trettini tusen, åtte hundre og sekstitre = _____

3. Rund av til nærmeste hundrer.

120 ≈ ____	150 ≈ ____

349 ≈ ____	852 ≈ ____
1736 ≈ ____	1256 ≈ ____

4. Rund av til nærmeste tidel. Sett kryss på riktig svar.

25,864 ≈	25,86	25,87	25,8	25,9
70,473 ≈	70,5	70,47	70,4	70,48
16,757 ≈	16,7	16,8	16,76	16,75

5. **Tegn strek ned på riktig sted på tallinja.**

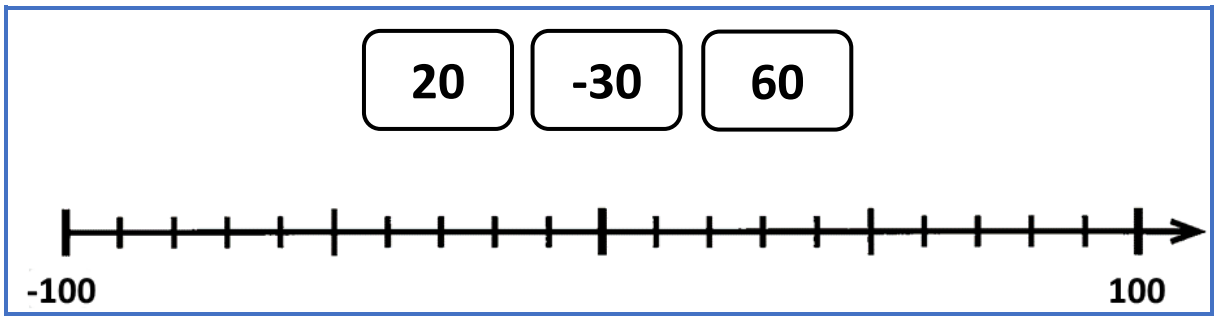

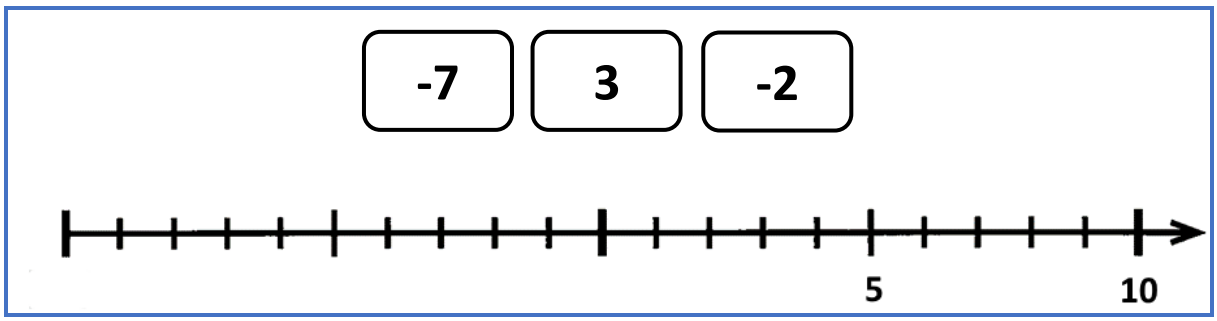

6. **Hvilket tall peker pila på?**

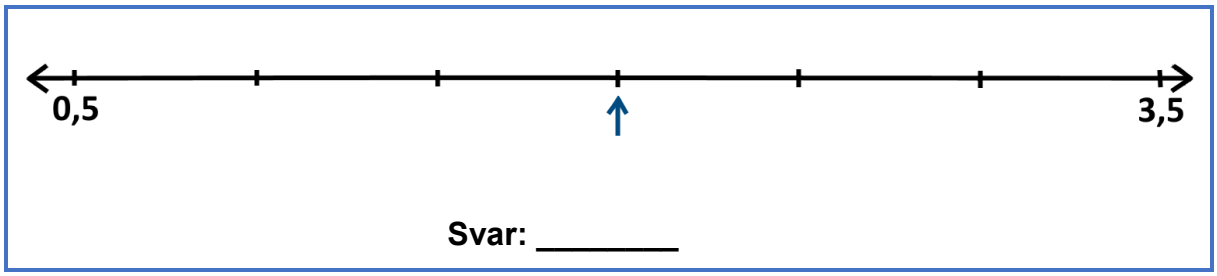

Svar: _____

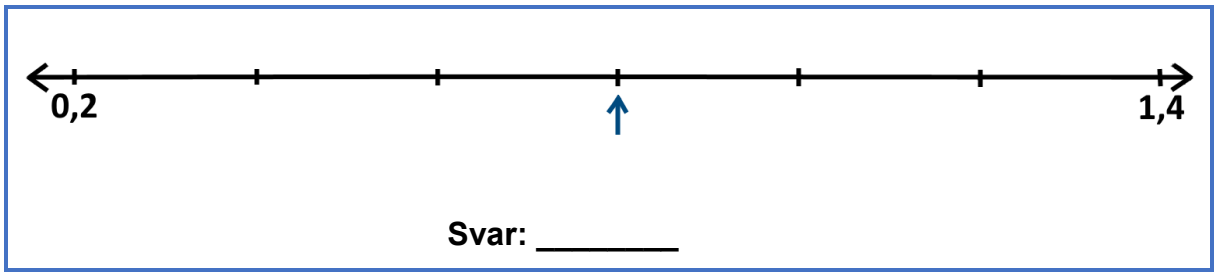

Svar: _____

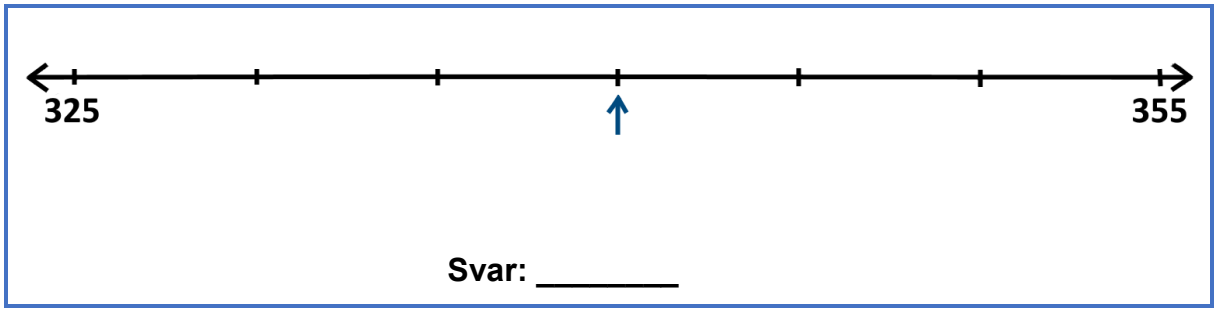

Svar: _____

7. Regn ut

12 + 5 = ____	19 + 12 = ____
375 + 23 = ____	379 + 59 = ____
34 – 6 = ____	340 – 27 = ____
8 – 15 = ____	220 – 132 = ____
6 • 4 = ____	9 • 6 = ____
12 • 8 = ____	11 • 3 = ____
15 : 5 = ____	100 : 25 = ____
36 : 3 = ____	2 : 4 = ____

8. Regn ut og skriv svaret

Langbakken skole arrangerte friidrettsdag. Espen og Noah hoppet stille lengde.
Espen hoppet 1 m og 20 cm, og Noah hoppet 95 cm.

Svar: _____

Hvor mange centimeter lengre hoppet Espen enn Noah?

Nina sparer til ny sparkesykkel som koster 2400 kr.
Hver uke tjener hun 200 kr på å lufte hunden til naboen, og 100 kr på barnepass.
I løpet av en uke bruker hun 100 kr på fritidsklubben.

Svar: _____

Hvor mange uker må Nina spare for å få råd til sparkesykkelen?

9. Regn ut

		2	7
+	1	6	0
=			

	5	9	1
+	2	7	6
=			

	1	3	7	5
+	1	8	3	5
=				

	2	8	7
-		6	5
=			

	5	9	1
-	2	7	6
=			

	4	0	0	0
-		8	3	5
=				

10. Velg ordet som beskriver hvor stor sannsynligheten er for å få ensfarget? Sett kryss på riktig svar.

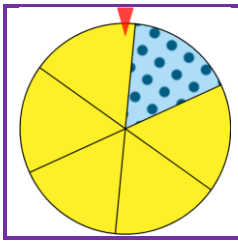

Lite sannsynlig

Sannsynlighet lik 1

Stor sjanse

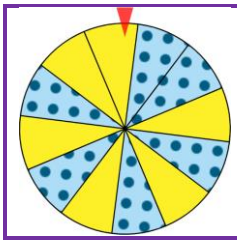

Trolig

50-50

Helt sikkert

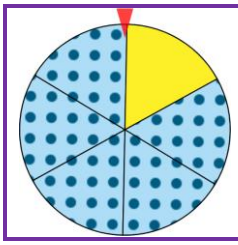

Liten sjanse

Umulig

50-50

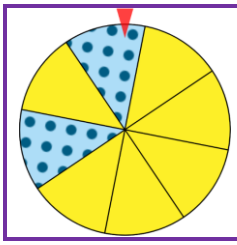

Sannsynlighet lik 0

Helt sikkert

Trolig

11. Fargelegg ⅓ av rektangelet

12. Hva heter figurene?

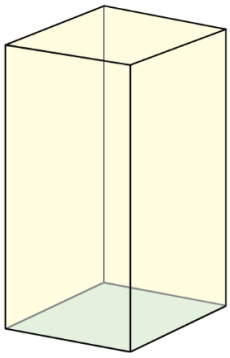

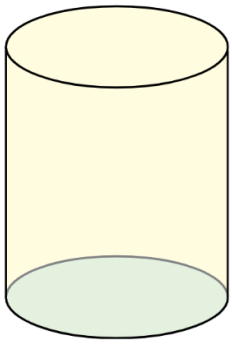

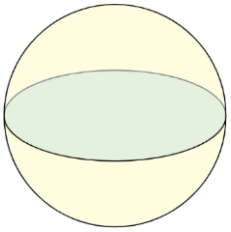

_____ _____ _____

13. Lag et rektangel med areal på 12 cm²



14. Skriv to klokkeslett til hver klokke.

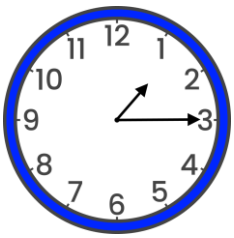

_____.____

_____.____

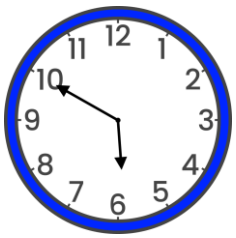

_____.____

_____.____

15. Løs oppgaven

Diagrammet viser hvor mange damer og herrer som deltok i vinter-OL mellom 1980 og 2018.

Hvilket årstall var det for første gang mer enn 1600 damer og herrer til sammen?

Svar: _____

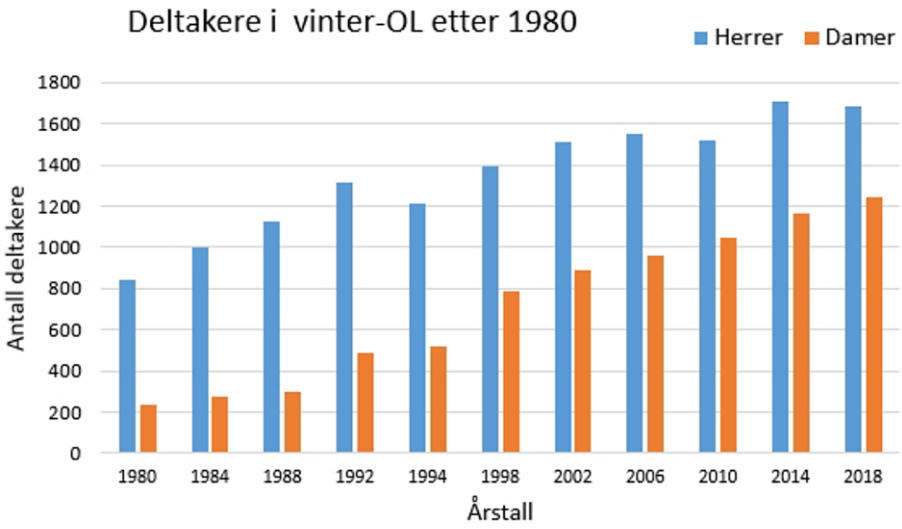

16. Løs oppgaven

Kari og Lars skal sjøsette båten lørdag formiddag.
Det må de gjøre når det er flo.

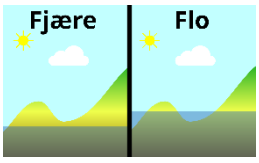

	Mandag	Tirsdag	Onsdag	Torsdag	Fredag	Lørdag	Søndag
Fjære	10:59 23:17	11:31 23:53	12:13	00:46 13:13	03:18 15:38	04:23 16:42	05:17 17:38
Flo	04:57 17:12	05:27 17:49	06:06 18:37	07:03 20:03	09:07 22:03	10:18 23:04	11:13 23:59

Tabell over flo og fjære

Når er det flo på lørdag formiddag? **Svar: _____**