**7. trinn**
**høsten**

# Kartlegging av regneferdigheter

Elev:_____

Klasse:____

År:_____

Kontaktlærer:_____

## 1. Finn tallet

| | |
|---|---|
| Skriv tallet som er 7000 større enn 31 882 | |
| Skriv tallet som er 200 større enn 1882 | |
| Skriv tallet som er 40 millioner mindre enn 85 775 539 | |
| Skriv tallet som er 4000 mindre enn 9 079 580 | |

## 2. Skriv tallene med siffer.

Fem tusen, tre hundre og førtifire = _____

Tre millioner, tretten tusen og atten = _____

Trettiåtte tusen, åtte hundre og sekstitre = _____

## 3. Rund av til nærmeste hundrer.

| | |
|---|---|
| 349 ≈ _____ | 852 ≈ _____ |
| | |
| 1756 ≈ _____ | 1236 ≈ _____ |

## 4. Rund av til nærmeste tidel. Sett kryss på riktig svar.

| | | | | |
|---|---|---|---|---|
| 25,864 ≈ | 25,86 | 25,87 | 25,8 | 25,9 |
| 70,473 ≈ | 70,5 | 70,47 | 70,4 | 70,48 |
| 16,757 ≈ | 16,7 | 16,8 | 16,76 | 16,75 |

5. **Tegn strek ned på riktig sted på tallinja.**

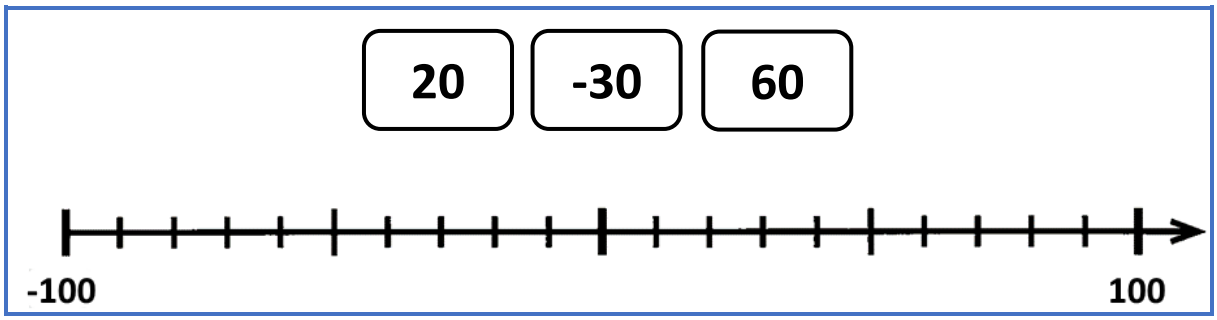


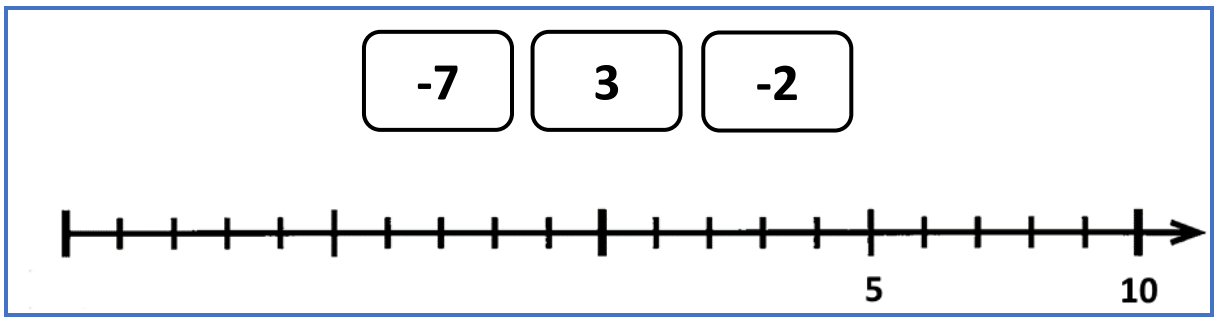


6. **Hvilket tall peker pila på?**

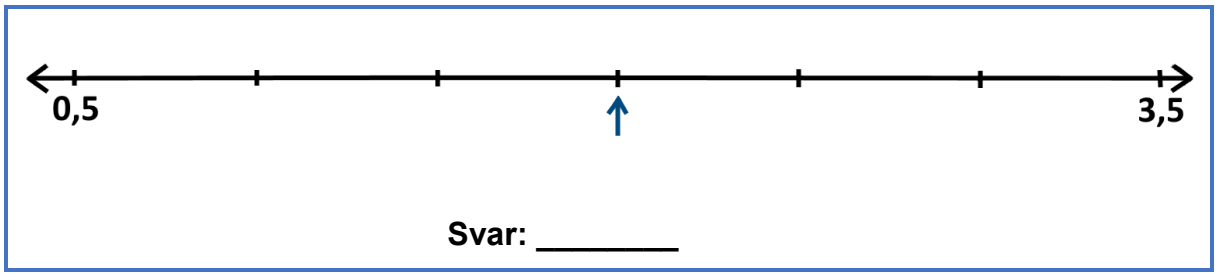


Svar: _____

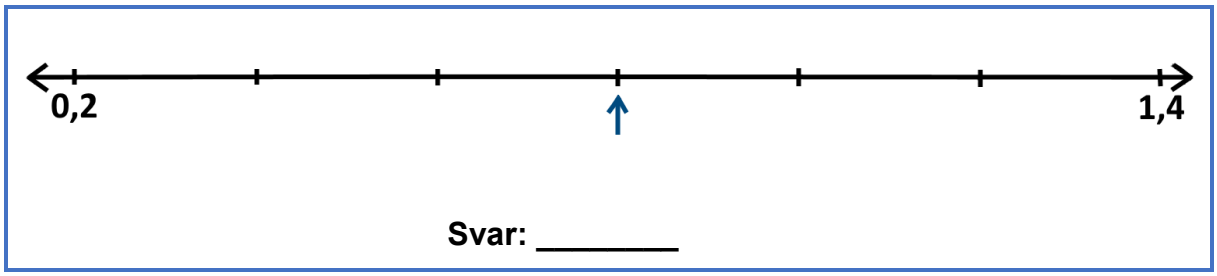


Svar: _____

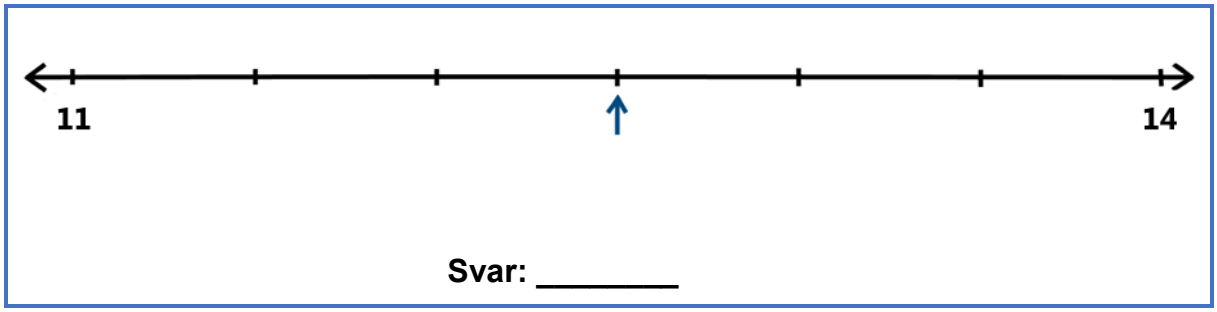


Svar: _____

## 7. Fyll ut de tomme feltene slik at regnestykkene blir riktig

| | | | |
|---|---|---|---|
| | | | |
| | 2 | 8 | 7 |
| + | | 6 | 0 |
| = | 5 | | |

| | | | | |
|---|---|---|---|---|
| | | | | |
| | | 4 | | 3 |
| - | 1 | 4 | 1 | |
| = | 1 | | 1 | 0 |

## 8. Regn ut

| | |
|---|---|
| 7 • 8 = ____ | 9 • 6 = ____ |
| 12 • 8 = ____ | 11 • 3 = ____ |
| 15 : 5 = ____ | 100 : 25 = ____ |
| 360 : 3 = ____ | 2 : 4 = ____ |

## 9. Regn ut og skriv svarene

Langbakken skole arrangerte friidrettsdag. Espen og Noah hoppet stille lengde.
Espen hoppet 1 m og 19 cm, og Noah hoppet 95 cm.

**Svar:** _____

**Hvor mange centimeter lengre hoppet Espen enn Noah?**

Mikkel står i kø for å kjøre berg-og-dal-banen *ThunderCoaster* på Tusenfryd. Mikkel ser at hvert togsett består av fire vogner med plass til seks personer i hver vogn.

**Svar:** _____

**Hvor mange personer er det plass til i hvert togsett?**

## 10. Speil figuren om det grå linjestykket

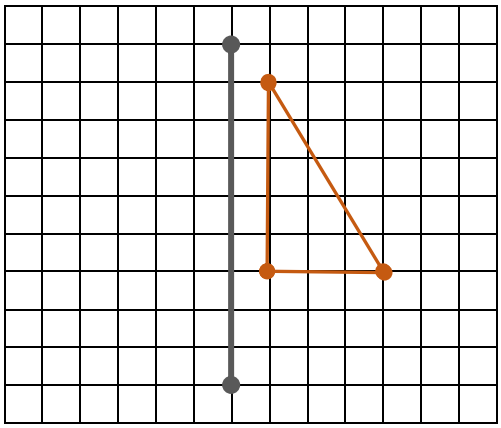

## 11. Fargelegg fire tolvdeler av rektangelet

## 12. Hva heter figurene?

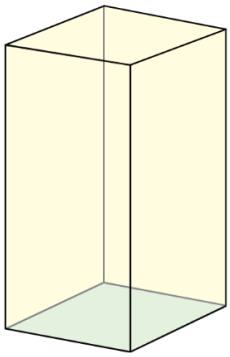

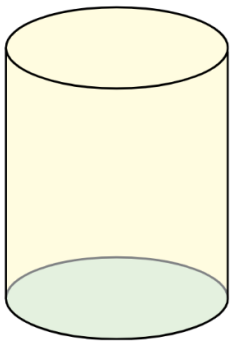

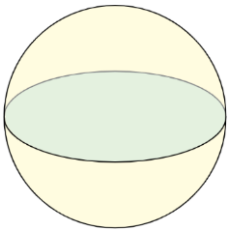

_____ _____ _____

## 13. Skriv to klokkeslett til hver klokke.

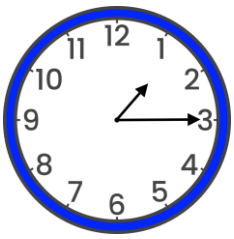

_____._____

_____.

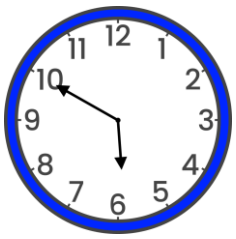

_____.

_____.

**14. Lag et rektangel med areal på 12 $cm^2$**




**15. Gjør om til meter**

| | |
|---|---|
| 101 cm = _____m | 32 cm = _____m |
| 1,1 km = _____m | 230mm = _____m |

**16. Gjør om til liter**

| | |
|---|---|
| 17 dl = _____l | 1,1 dl = _____l |
| 120 cl = _____l | 300 ml = _____l |

## 17. Løs oppgaven

Diagrammet viser befolkningsveksten i fire kommuner i 2018 og 2019.

**I hvilken kommune har befolkningsveksten minket?**

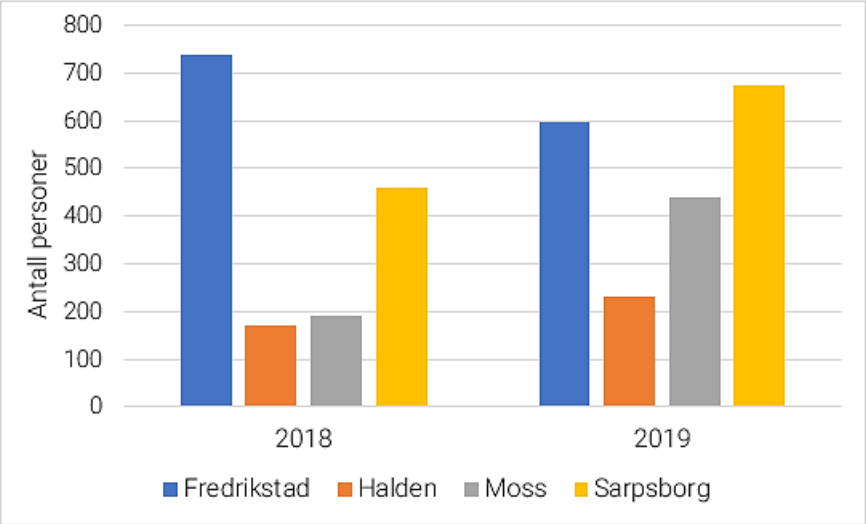


**Svar: _____**

## 18. Løs oppgaven

Diagrammet under viser registrert fangst av fisk i noen elver i 2017. I noen elver er fangsten mer enn 30 000 kg.

**Hvilke elver gjelder dette?**

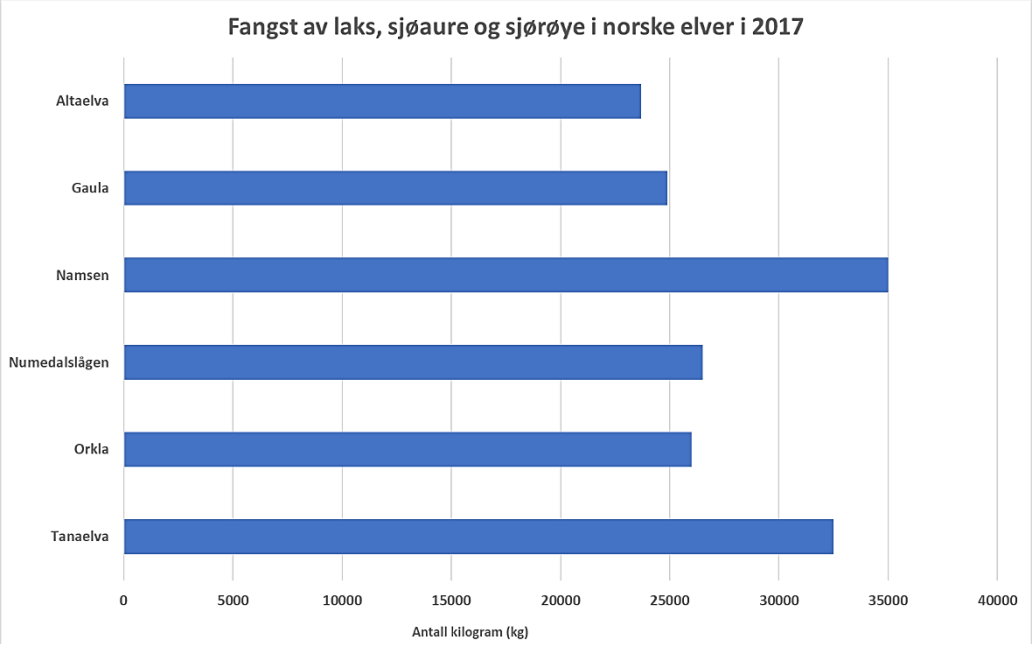


**Svar: _____**