7. trinn
våren

Kartlegging av regneferdigheter

Elev:_____

Klasse:____

År:_____

Kontaktlærer:_____

1. Finn tallet

Skriv tallet som er 8000 større enn 31 882	
Skriv tallet som er 10 000 større enn 433 472	
Skriv tallet som er 4 millioner mindre enn 85 674 539	
Skriv tallet som er 100 000 mindre enn 9 079 580	

2. Skriv tallene med siffer.

Fire tusen, to hundre og førtifem = _____

To millioner, tretten tusen og atten = _____

Trettini tusen, fem hundre og tjuetre = _____

3. Rund av til nærmeste hundrer.

650 ≈ _____	742 ≈ _____
1751 ≈ _____	2966 ≈ _____

4. Fortsett tallrekkene

43	37	31			
14	21	28			
2,5	2,9	3,3			

5. **Tegn strek ned på riktig sted på tallinja.**

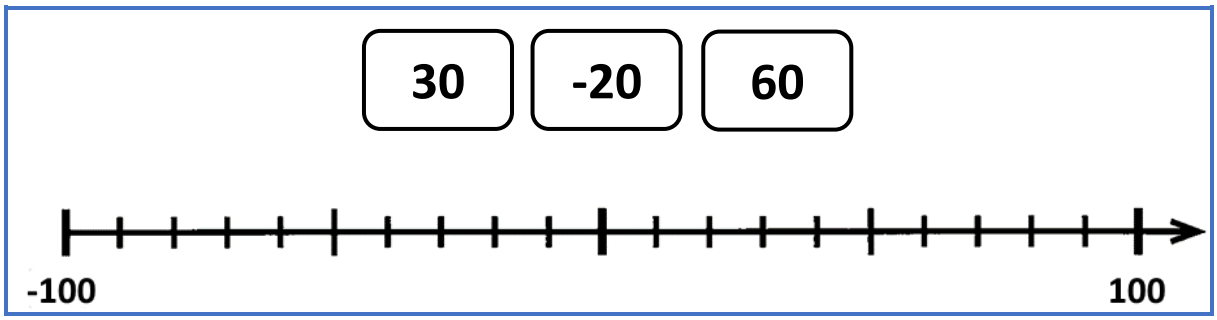

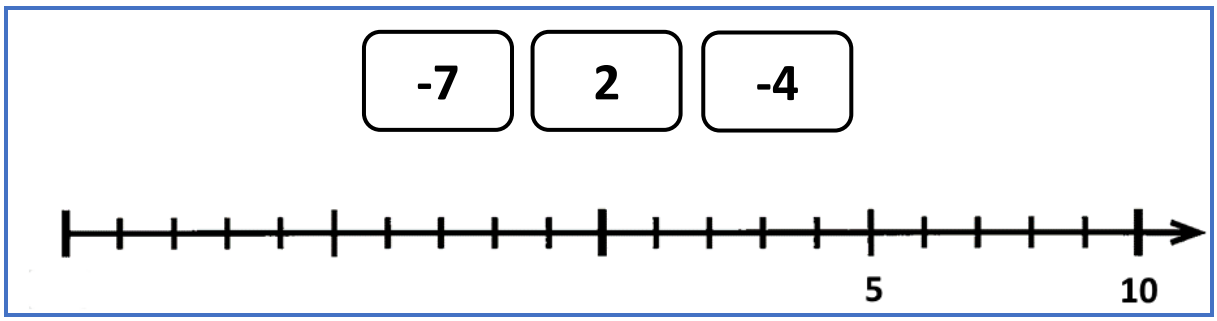

6. **Hvilket tall peker pila på?**

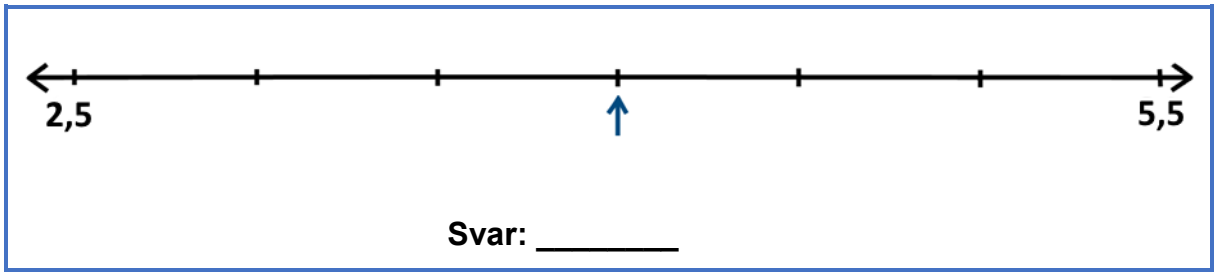

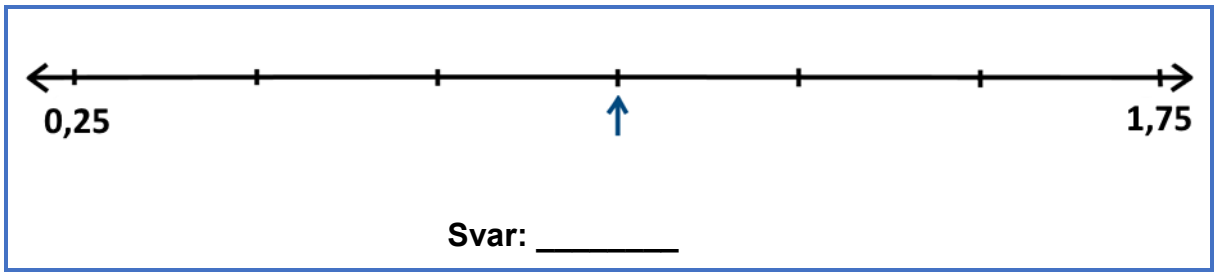

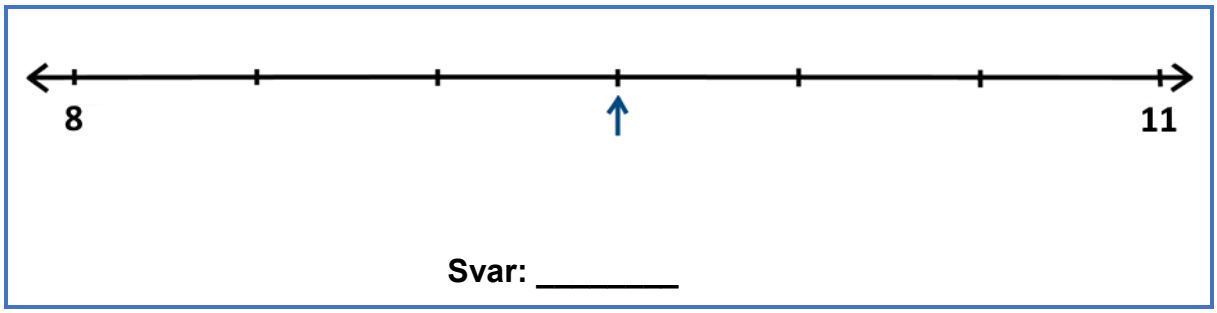

7. Regn ut

7 + ____ = 21	38 = 29 + ____
26 + 7 = ____ + 12	23 + 2 = ____ + 9
35 – ____ = 18	14 = 33 – ____
20 – 5 = 33 – ____	23 – 5 = ____ – 7
7 • 8 = ____	9 • 6 = ____
12 • 8 = ____	11 • 4 = ____
15 : 5 = ____	100 : 25 = ____
360 : 3 = ____	4 : 4 = ____

8. Regn ut og skriv svarene

Sara skal sy nye gardiner til rommet sitt. Hun måler og finner ut at hun trenger 0,5 m gardinstoff per vindu.
Sara skal kjøpe gardinstoff til fem vindu.

Svar: _____

Hvor mange meter gardinstoff skal Sara kjøpe?

Det dypeste punktet i Nordfjorden i Vestland fylke er -565 meter over havet (moh.). Blånibba, som ligger ved fjorden, er 1670 moh.

Svar: _____

Hvor stor høydeforskjell er det mellom Blånibba og det dypeste punktet i Nordfjorden?

9. Fyll ut de tomme feltene slik at regnestykkene blir riktig

	2	8	7
+		6	0
=	5		

		4		3
-	1	4	1	
=	1		1	0

10. Målestokk

Leiv Eriksson oppdaget Nord-Amerika i vikingtiden. Kartet viser at han reiste fra Grønland og oppdaget tre steder som han kalte Helleland, Markland og Vinland

Reiseruta fra Grønland til Helleland er 20 cm på kartet. Kartet er i målestokk 1 : 5 000 000

Hvor mange kilometer var reiseruta fra Grønland til Helleland i virkeligheten?

Svar: _____

11. Brøk

Fargelegg to tredeler av rektangelet.

Fargelegg to tolvdeler av rektangelet

12. Skriv to klokkeslett til hver klokke.

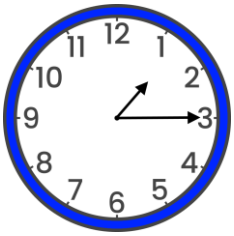

_____.____

_____.____

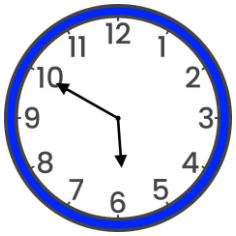

_____.____

_____.____

13. Lag et rektangel med areal på 8 cm^2



14. Omkrets og areal

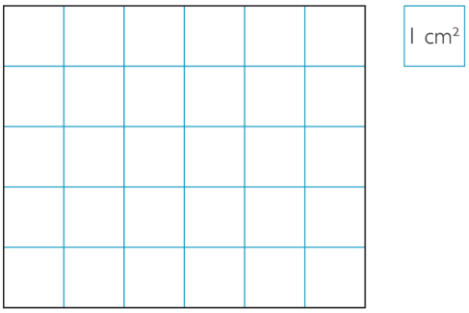

Regn ut omkrets og areal av figuren til venstre.

Omkrets: _____

Areal: _____

15. Skriv som liter

30 dl = _____*l*	6 dl = _____*l*	122 dl = _____*l*

16. Skriv som meter

300 cm = _____*m*	50 cm = _____*m*	250 mm = _____*m*

17. Skriv som kilogram

3000 g = _____*kg*	12 hg = _____*kg*	385 g = _____*kg*

18. Løs oppgaven

Diagrammet under viser antall år det var forventet at en person ville gå på skole i noen land i 1999 og 2012.

I hvilke land var det forventet at en person gikk kortere tid på skole i 2012 enn i 1999?

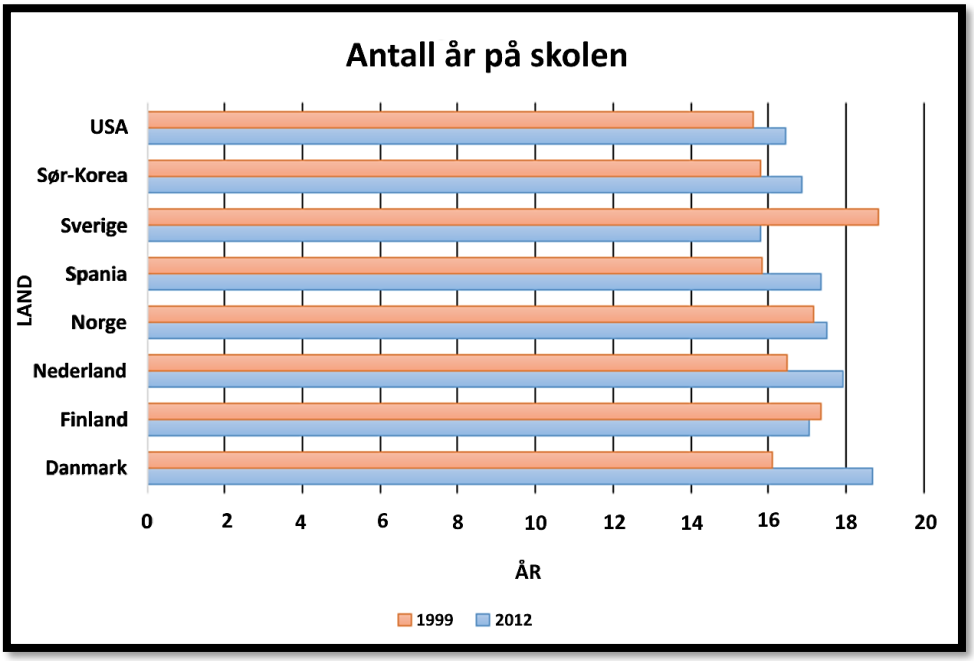

Svar: _____

19. Løs oppgaven

Pelle har spurt 80 elever på skolen om de skal feire halloween. Halvparten av dem svarte ja.

Hvor mange elever svarte nei?

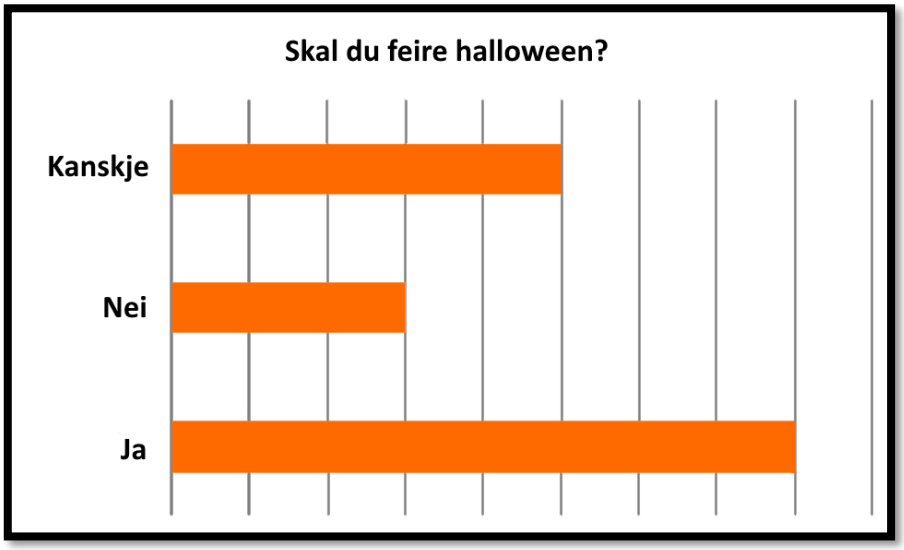

Svar: _____