3. trinn
våren

Kartlegging av regneferdigheter

Elev:_____

Klasse:____

År:_____

Kontaktlærer:_____

1. Hvor mye?

Eksempel

12 kr	13 kr	14 kr	15 kr

52 kr	60 kr	65 kr	70 kr



104 kr	113 kr	117 kr	171 kr

176 kr	226 kr	626 kr	636 kr

2. Tegn strek ned på riktig sted på tallinja.

32 69 53

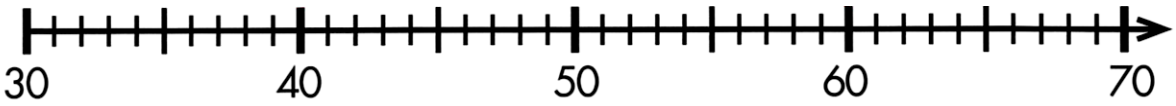

110 290 160

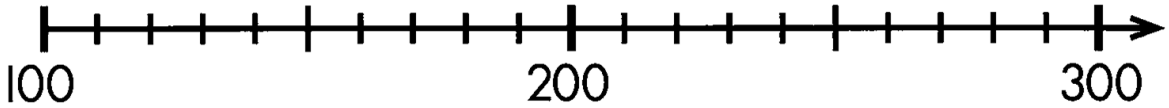

3. Nærmeste tall

Eksempel

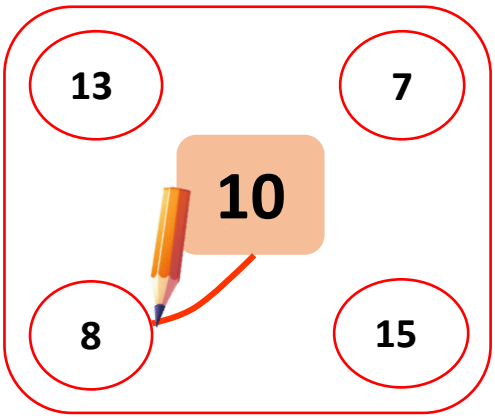

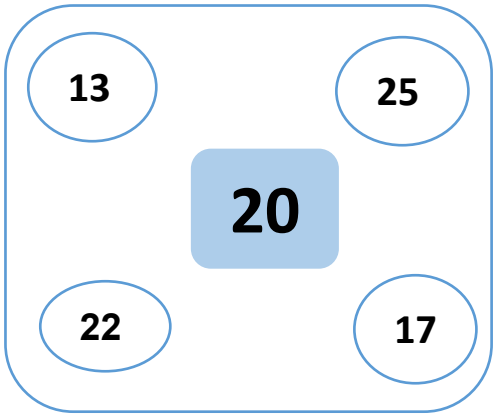

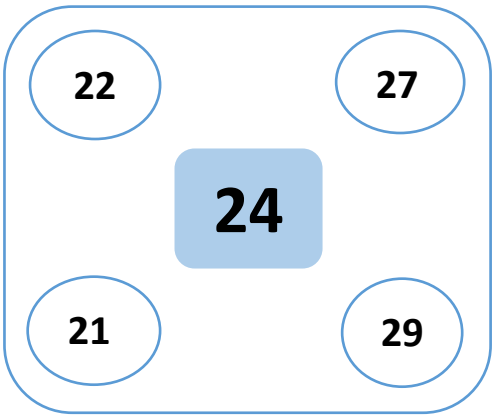

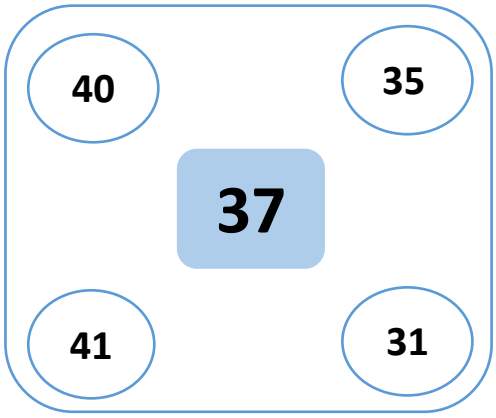

4. Skriv to klokkeslett til hver klokke.

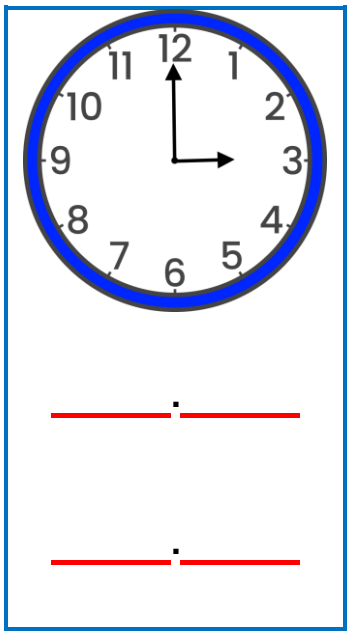

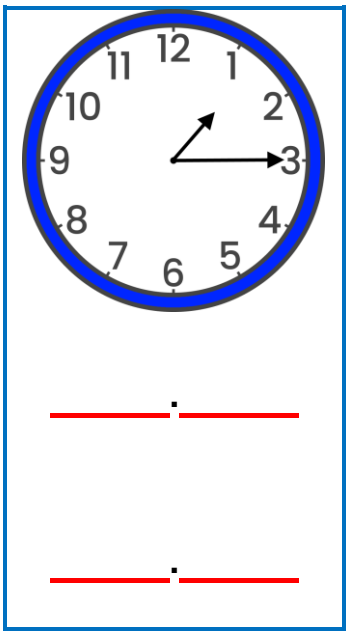

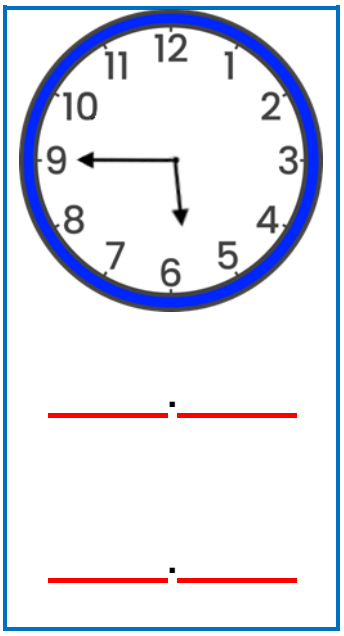

5. Utvidet form

Eksempel

200	+	30	+	8	=	238
			+		=	64
	+		+		=	852

6. Skriv som ett tall med tallsymboler.

Eksempel: Trettitre = 33 .

Femtito = _____

Fem hundrere, åtte tiere og tre enere = _____

Tre tusen og førtien = _____

Tolv hundrere og seks tiere = _____

7. Tallrekker

Eksempel

2	4	6	8	10	12
7	10	13			
43	41	39			
26	36	46			
15	20	25			

8. Tegn ring rundt halvparten

Eksempel

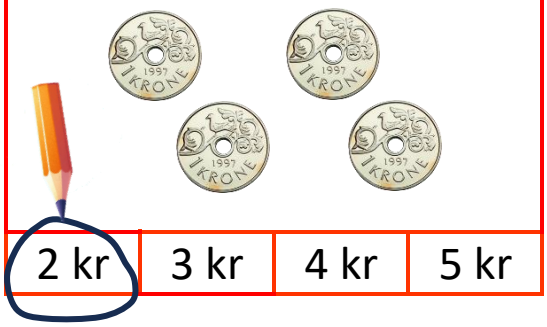

2 kr	3 kr	4 kr	5 kr

10 kr	20 kr	25 kr	30 kr

46 kr	56 kr	57 kr	62 kr

13 kr	23 kr	33 kr	43 kr

9. Tegn ring rundt det dobbelte

Eksempel

8 kr	9 kr	10 kr	11 kr

60 kr	70 kr	80 kr	90 kr

29 kr	30 kr	32 kr	33 kr

71 kr	72 kr	73 kr	74 kr

10. Skriv tallene i stigende rekkefølge

8 12 17
6 14

Eksempel

6	8	12	14	17

94 109 89
114 100

199 217 272
73 98

209 214 139
198 230

11. Regn ut

		3	7
+	2	6	1
=			

	4	6	3
+	2	7	6
=			

	1	3	7
+	2	8	3
=			

	2	7	8
-	1	5	6
=			

	5	9	7
-	2	7	6
=			

	5	2	3
-	1	7	4
=			

12. Regn ut

14 + 5 = ___	16 + 9 = ___
7 + ___ = 20	38 = 29 + ___

13. Regn ut

18 – 5 = ___	20 – 4 = ___
15 – ___ = 7	10 = 23 – ___

14. Regn ut

3 • 1 = ___	3 • 5 = ___
2 • 6 = ___	4 • 2 = ___

15. Regn ut

10 : 2 = ___	10 : 5 = ___
8 : 2 = ___	6 : 3 = ___

16. Hvor mye? Regn ut og skriv svarene.

I en togvogn er det ni seter.
Det sitter to personer på hvert sete.

Hvor mange personer sitter i vognen?

Det sitter _____ personer i vognen.

Oda har 20 ballonger.
Hun gir seks ballonger til hvert av de tre søskene sine

Hvor mange ballonger har Oda igjen?

Oda har _____ ballonger igjen.

Janne har 20 kr. Erlend har 5 kr mer.
Henrik har like mye som Janne og Erlend til sammen.

Hvor mange kroner har Henrik?

Henrik har _____ kr.

Hvor mange kroner har de til sammen alle tre?

De har _____ kr til sammen alle tre.