**4. trinn**
**våren**

# Kartlegging av regneferdigheter

Elev:_____

Klasse:____

År:_____

Kontaktlærer:_____

## 1. Hvor mye? Sett ring rundt riktig svar.

| | | | |
|---|---|---|---|
| 12 kr | 13 kr | 14 kr | 15 kr |

| | | | |
|---|---|---|---|
| 52 kr | 60 kr | 65 kr | 70 kr |



| | | | |
|---|---|---|---|
| 104 kr | 113 kr | 127 kr | 172 kr |

| | | | |
|---|---|---|---|
| 536 kr | 236 kr | 626 kr | 636 kr |

## 2. Tegn strek ned på riktig sted på tallinja.

37 69 42

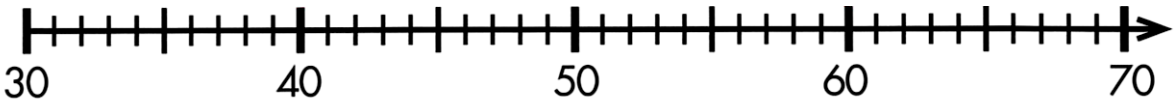


260 130 170

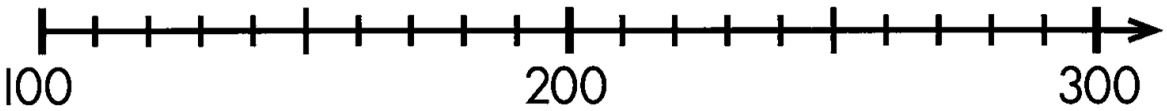

**3. Hvilket tall peker pila på?**

Svar: _____

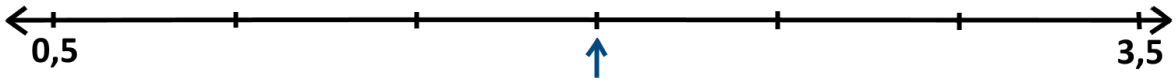


Svar: _____

Svar: _____

**4. Skriv som ett tall med tallsymboler.**

Sekstifire = _____

Seks hundrere, åtte tiere og tre enere = _____

Tre tusen og førtien = _____

Tolv hundrere og tre tiere = _____

**5. Nærmeste hundrer**

| | |
|---|---|
| 248 ≈ _____ | 162 ≈ _____ |
| 377 ≈ _____ | 1852 ≈ _____ |

**6. Fortsett tallrekkene**

| | | | | | |
|---|---|---|---|---|---|
| 5 | 10 | 15 | | | |
| 43 | 41 | 39 | | | |
| 14 | 24 | 34 | | | |
| 2,3 | 2,5 | 2,7 | | | |

**7. Regn ut**

| | |
|---|---|
| 7 + ____ = 20 | 38 = 29 + ____ |
| 16 + 7 = ____ + 14 | 20 + 2 = ____ + 9 |
| 35 – ____ = 17 | 10 = 23 – ____ |
| 20 – 5 = 23 – ____ | 21 – 5 = ____ – 7 |
| 5 • 3 = ____ | 4 • 6 = ____ |
| 7 • 4 = ____ | 8 • 6 = ____ |
| 12 : 2 = ____ | 9 : 3 = ____ |
| 15 : 5 = ____ | 10 : 10 = ____ |

## 8. Regn ut

| | | | |
|---|---|---|---|
| | | | |
| | | 3 | 7 |
| + | 2 | 6 | 1 |
| = | | | |

| | | | |
|---|---|---|---|
| | | | |
| | 5 | 9 | 2 |
| + | 2 | 7 | 6 |
| = | | | |

| | | | | |
|---|---|---|---|---|
| | | | | |
| | 1 | 3 | 7 | 5 |
| + | 1 | 8 | 3 | 5 |
| = | | | | |

| | | | |
|---|---|---|---|
| | | | |
| | 4 | 7 | 7 |
| - | | 5 | 6 |
| = | | | |

| | | | |
|---|---|---|---|
| | | | |
| | 5 | 9 | 1 |
| - | 2 | 7 | 6 |
| = | | | |

| | | | | |
|---|---|---|---|---|
| | | | | |
| | 5 | 0 | 0 | 0 |
| - | | 7 | 4 | 7 |
| = | | | | |

## 9. Regn ut og skriv svaret

Ludvig har 50 kr.
Han kjøper kort som koster 9 kr per stk.

**Svar:** _____

**Hvor mange kort kan han kjøpe?**

Et rektangel er 6 cm bredt og 4 cm langt.

**Hvor stort er arealet av rektangelet?**

**Svar:** _____

På en konsert var det 3268 voksne og 1985 barn.

**Hvor mange var det på konserten?**

**Svar:** _____

Til utregning:

| | | | | |
|---|---|---|---|---|
| | | | | |
| | | | | |
| | | | | |

**10. Skriv to klokkeslett til hver klokke.**

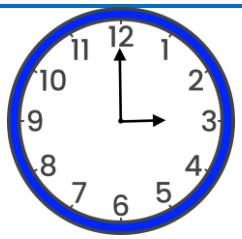

_____._____

_____.____

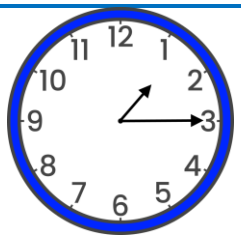

_____._____

_____.____

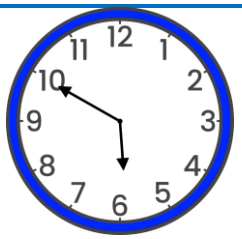

_____.____

_____.____

**11. Tegn på visere slik at de viser tidspunktet som står under**

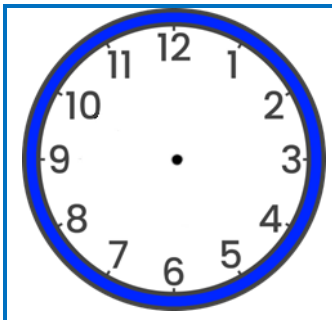

**11.30**

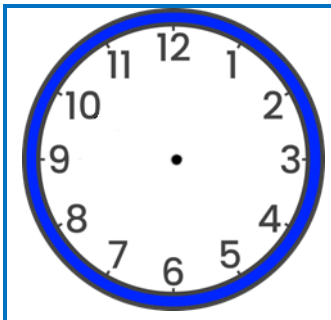

**18.00**

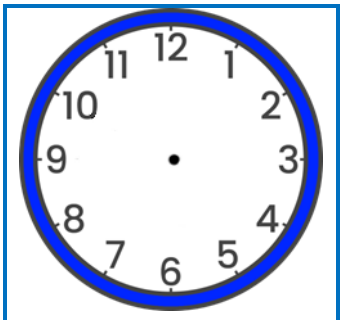

**21.45**

**12. Skriv som liter**

| | | |
|---|---|---|
| 20 dl = _____*l* | 5 dl = _____*l* | 112 dl = _____*l* |

**13. Skriv som meter**

| | | |
|---|---|---|
| 200 cm = _____*m* | 50 cm = _____*m* | 250 mm = _____*m* |

**14. Skriv som kilogram**

| | | |
|---|---|---|
| 4000 g = _____*kg* | 12 hg = _____*kg* | 375 g = _____*kg* |

**15. Regn ut og skriv svaret**

En uke går Hanna 56 km på ski.
Uken etter går hun 7 km lengre.

**Hvor langt gikk hun til sammen de to ukene?**

**Svar: _____**

**16. Regn ut og skriv svarene.**

Diagrammet under viser alderen til tilskuerne som var på en kino.

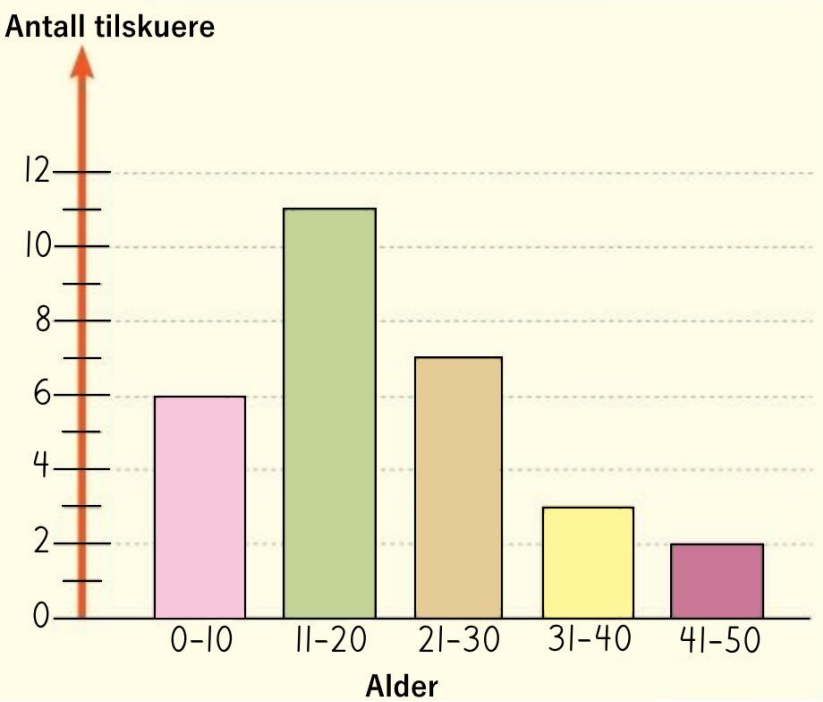


**Hvor mange flere tilskuere var på kinoen i alderen 11-20 enn i alderen 0-10?** **Svar: _____**

**Hvor mange tilskuere var over 20 år?** **Svar: _____**