5. trinn
våren

Kartlegging av regneferdigheter

Elev:_____

Klasse:____

År:_____

Kontaktlærer:_____

1. Hvor mye? Sett ring rundt riktig svar.

104 kr	113 kr	117 kr	171 kr

176 kr	226 kr	626 kr	636 kr

2. Skriv som ett tall med tallsymboler

Sekstitre = _____

Seks hundrere, ni tiere og fire enere = _____

Tre tusen og førtito = _____

Fjorten hundrere og tre tiere = _____

3. Rund av til nærmeste hundrer.

240 ≈ _____	150 ≈ _____
349 ≈ _____	1952 ≈ _____

4. Fortsett tallrekkene

42	38	34			
14	21	28			
2,5	2,9	3,3			

5. **Tegn strek ned på riktig sted på tallinja.**

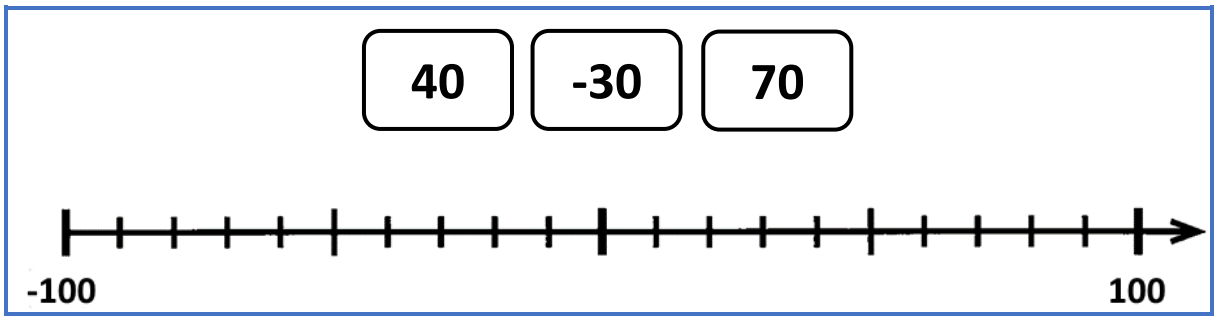

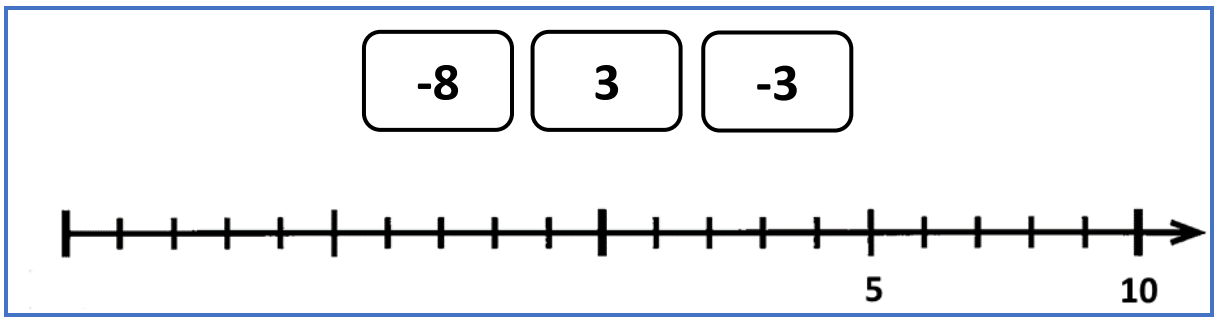

6. **Hvilket tall peker pila på?**

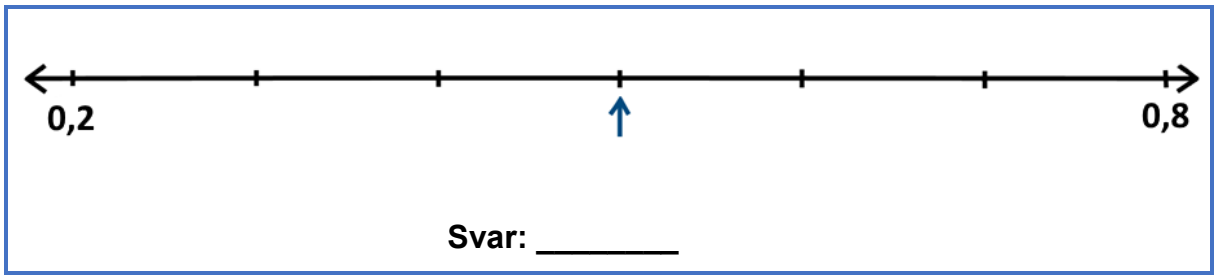

Svar: _____

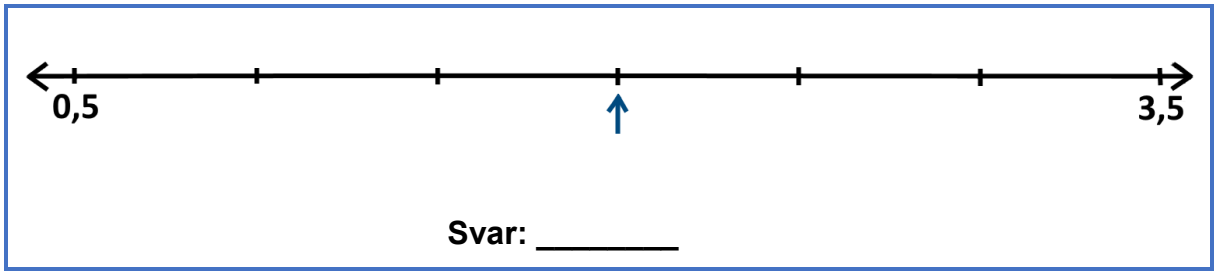

Svar: _____

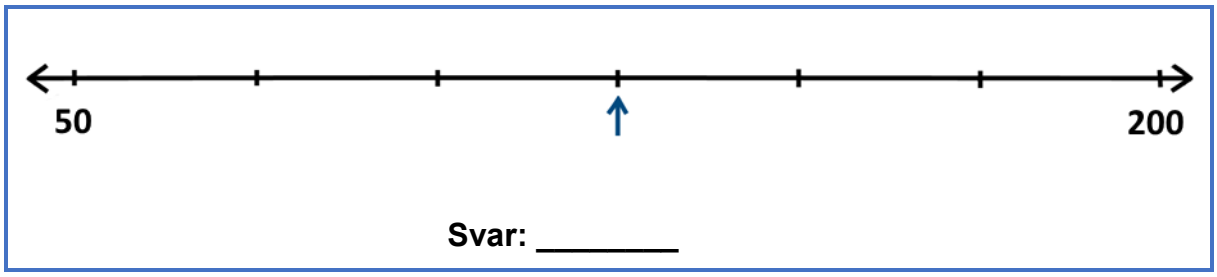

Svar: _____

7. Regn ut

7 + ____ = 21	38 = 29 + ____
16 + 7 = ____ + 12	23 + 2 = ____ + 9
35 – ____ = 17	10 = 23 – ____
20 – 5 = 23 – ____	23 – 5 = ____ – 7
7 • 8 = ____	9 • 6 = ____
12 • 8 = ____	11 • 4 = ____
15 : 5 = ____	100 : 25 = ____
36 : 3 = ____	4 : 4 = ____

8. Regn ut og skriv svaret

Hanne skal hente frukt til hele klassen sin. Hver elev skal ha en halv banan. I klassen til Hanne er det 24 elever.

Hvor mange bananer må Hanne hente? **Svar:** _____

Lina selger kakebokser for skøyteklubben.
Hun selger hver kakeboks for 50 kr.
Skøyteklubben har betalt 20 kr for hver boks.

Hvor mye tjener skøyteklubben hvis Lina selger 10 bokser? **Svar:** _____

9. Skriv som liter

30 dl = _____L	6 dl = _____L	122 dl = _____L

10. Skriv som meter

300 cm = _____*m*	50 cm = _____*m*	250 mm = _____*m*

11. Skriv som kilogram

3000 g = _____*kg*	12 hg = _____*kg*	385 g = _____*kg*

12. Hvilken sirkel er ⅓ fargelagt? Sett kryss på riktig sirkel.

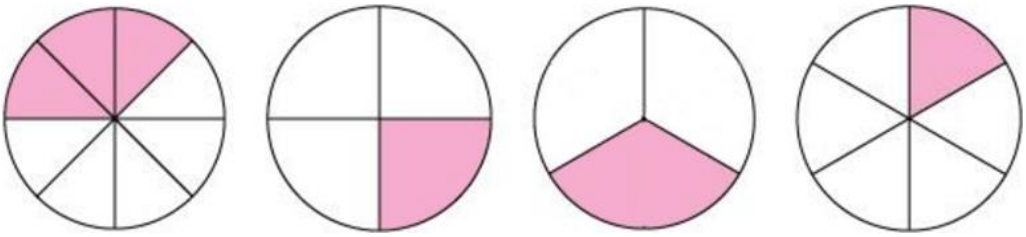

13. Skriv to klokkeslett til hver klokke.

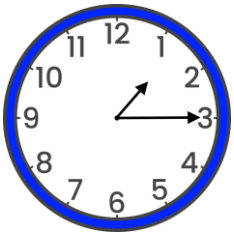

_____.____

_____.____

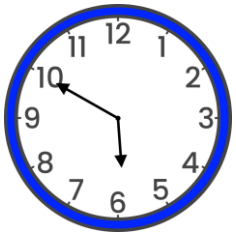

_____.____

_____.____

14. Skriv klokkeslettene med ord

14.30 = _____

06.45 = _____

21.15 = _____

15. Lag et rektangel med areal på 12 cm^2



16. Regn ut

		3	6
+	3	5	2
=			

	4	8	3
+	2	7	6
=			

	2	4	7	5
+	1	8	2	5
=				

	5	6	8
-	1	5	6
=			

	5	8	2
-	2	7	6
=			

	5	0	0	0
-		6	4	8
=				

17. Løs oppgaven

Friidrettsmerket for barneskolen	Gull		Sølv		Bronse	
	Gutter	Jenter	Gutter	Jenter	Gutter	Jenter
60 m	10 s	10,5 s	10,6 s	11 s	11,2 s	11,5 s
200 m	33 s	35 s	37 s	39 s	39 s	43 s

Tabellen over viser noen krav for å få friidrettsmerket i gull, sølv eller bronse. Fire elever løp 60-meter i gymtimen. Tabellen nedenfor viser tidene de fikk.

Gutter	Tid 60-meter
Arne	10,1 s
Theo	10,5 s

Jenter	Tid 60-meter
Eva	10,6 s
Iselin	10,4 s

Hvem av elevene greide kravet til gull?

Svar: _____

18. Løs oppgaven

Filip har en aktiv hund som er 20 kg. Hunden får to måltid hver dag.

	AKTIV HUND	IKKE-AKTIV HUND
	Daglig aktivitet: mer enn en time	*Daglig aktivitet: mindre enn en time*
Antall kg	**Gram per dag**	**Gram per dag**
2 kg	40 g	30 g
5 kg	90 g	60 g
10 kg	150 g	90 g
20 kg	240 g	160 g
30 kg	360 g	240 g
40 kg	440 g	280 g
50 kg	510 g	330 g

Hvor mange gram mat skal hunden ha til hvert måltid?

Svar: _____