6. trinn
våren

Kartlegging av regneferdigheter

Elev:_____

Klasse:____

År:_____

Kontaktlærer:_____

1. Hvor mye? Sett ring rundt riktig svar.

104 kr	113 kr	117 kr	171 kr

1326 kr	1136 kr	1126 kr	1026 kr

2. Skriv som ett tall med tallsymboler

Sekstitre = _____

Seks hundrere, ni tiere og fire enere = _____

Tre tusen og førtito = _____

Fjorten hundrere og tre tiere = _____

3. Rund av til nærmeste hundrer.

849 ≈ ____	1452 ≈ ____
1736 ≈ ____	2956 ≈ ____

4. Fortsett tallrekkene

42	36	30			

14	21	28			

2,5	2,9	3,3			

5. **Tegn strek ned på riktig sted på tallinja.**

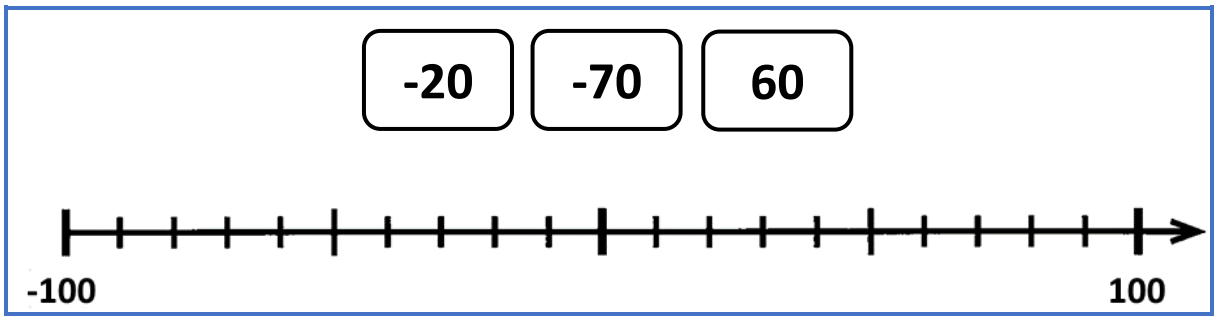

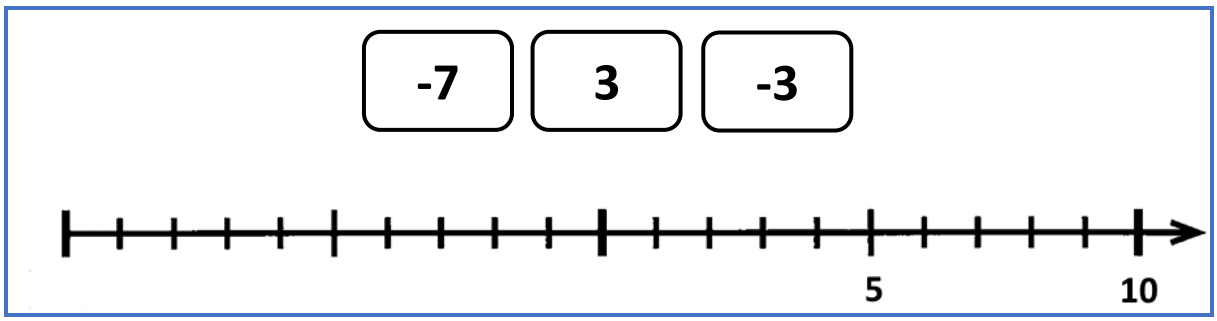

6. **Hvilket tall peker pila på?**

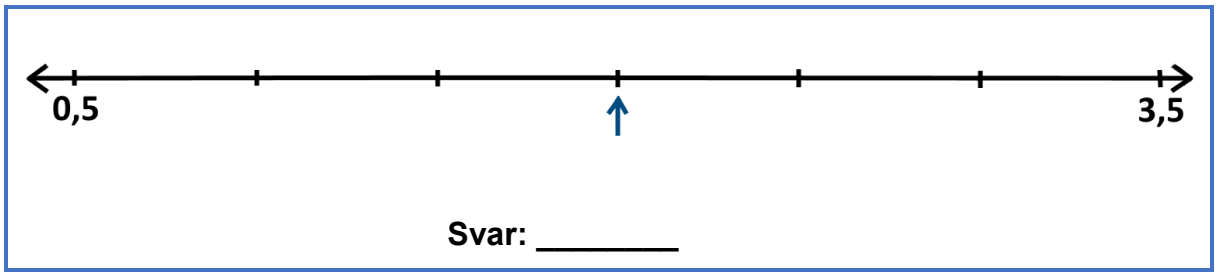

Svar: _____

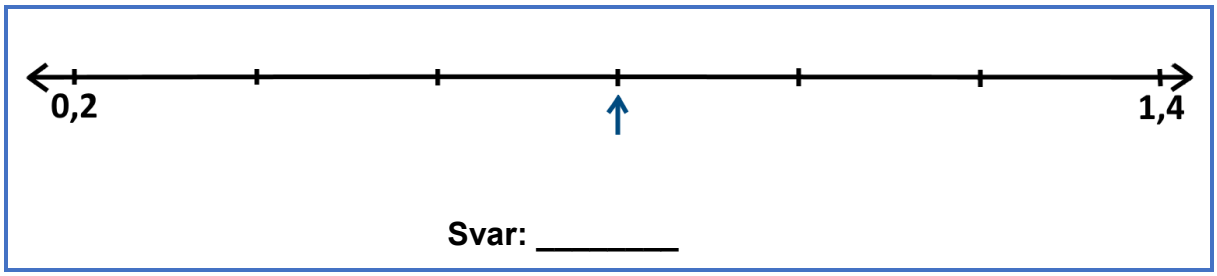

Svar: _____

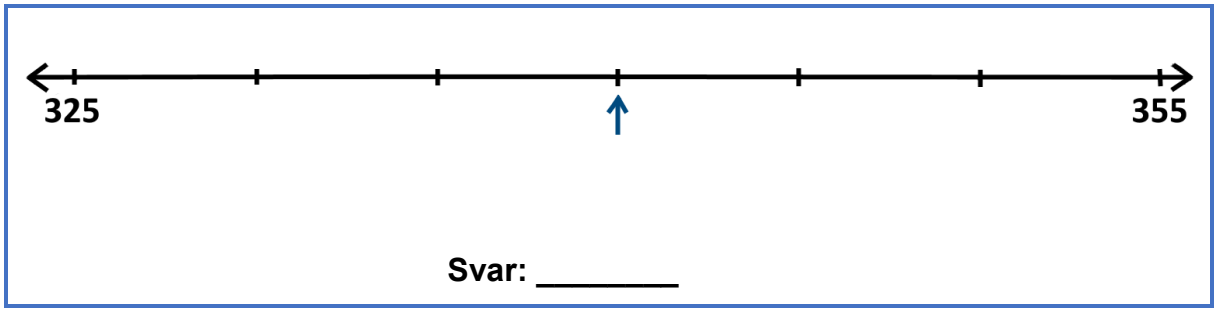

Svar: _____

7. Regn ut

12 + 7 = ____	19 + 12 = ____
26 + 7 = ____ + 12	23 + 2 = ____ + 9
34 – 6 = ____	340 – 27 = ____
20 – 5 = 23 – ____	23 – 5 = ____ – 7
6 • 7 = ____	9 • 6 = ____
12 • 8 = ____	11 • 6 = ____
15 : 5 = ____	100 : 20 = ____
36 : 3 = ____	5 : 5 = ____

8. Regn ut og skriv svaret

Rune har ei juicepresse. Av 2 kg appelsiner får han 1 liter juice. Han har kjøpt 6 kg appelsiner

Hvor mange liter juice får Rune av disse appelsinene? **Svar:** _____

Kaniner bør få 20 g pellets per dag for hvert kilogram de veier. Kaninen til Tuva veier 1,5 kg.

Hvor mange gram pellets bør kaninen til Tuva få per dag? **Svar:** _____

9. Regn ut

		2	7
+	1	6	0
=			

	5	9	5
+	2	6	6
=			

	1	3	7	5
+	1	8	2	5
=				

	2	8	7
-		6	5
=			

	5	9	1
-	2	7	6
=			

	3	0	0	0
-		6	4	7
=				

10. Regn ut

Kari skal bruke en oppskrift til å lage ei kake.

Hvor mye melis trenger hun til sammen?

Svar: _____

Bunn

150 g smør
3 store egg
4 dL sukker
3 ts vaniljesukker
2 ¾ dL hvetemel

Fyll

120 g kremost
2 ½ dL peanøttsmør
1 ½ dL melis
½ ts vaniljesukker
2 dL kremfløte

Glasur

50 g smør
120 g kremost
1 ts vaniljeekstrakt
3 ss kakao
4 ½ dL melis

11. Hvor stor del er farget?



Svar: _____

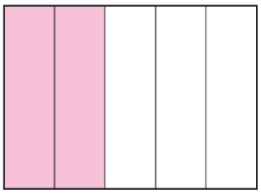

Svar: _____

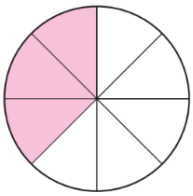

Svar: _____

12. Hvor mye er klokka? Skriv klokkeslettene digitalt på to måter

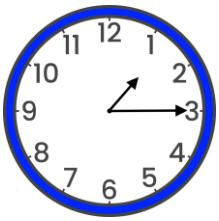

_____._____

_____.____

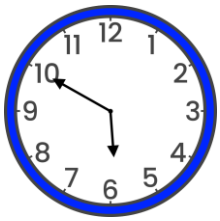

_____._____

_____.____

13. Lag et rektangel med areal på 8 cm²



14. Tegn strek ned på riktig sted på tallinja.

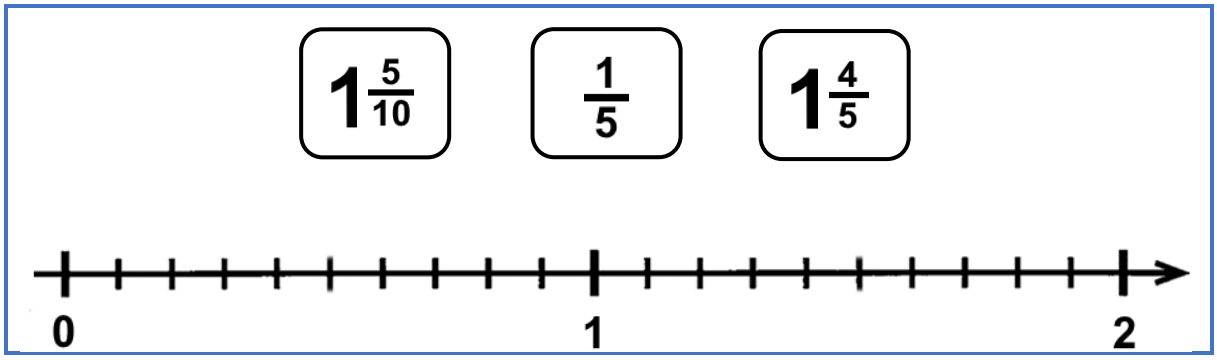

15. Løs oppgaven

		Tid (t, min)					
		Bergen	Kristiansand	Oslo	Stavanger	Tromsø	Trondheim
Avstand (km)	Bergen		8 t 22 min	7 t 54 min	5 t 4 min	29 t 1 min	10 t 50 min
	Kristiansand	485 km		4 t 58 min	3 t 42 min	30 t 39 min	12 t 29 min
	Oslo	484 km	327 km		8 t 18 min	25 t 44 min	7 t 33 min
	Stavanger	211 km	234 km	540 km		32 t 24 min	14 t 13 min
	Tromsø	1812 km	1975 km	1648 km	1996 km		18 t 17 min
	Trondheim	660 km	823 km	497 km	845 km	1155 km	

Harald skal kjøre fra Trondheim til Bergen.
Line skal kjøre fra Trondheim til Oslo

Hvor mange flere kilometer må Harald kjøre enn Line?

Svar: _____

16. Løs oppgavene

Fire venner plukket jordbær. Tabellen til høyre viser hvor mange bær hver av dem plukket i løpet av fem dager.

Diagrammet under viser det samme som tabellen.

Navn	Man	Tir	Ons	Tor	Fre
Isak	15	15	15	15	15
Kine	18	12	12	18	20
Linn	14	11	27	13	15
Noah	12	8	8	12	10
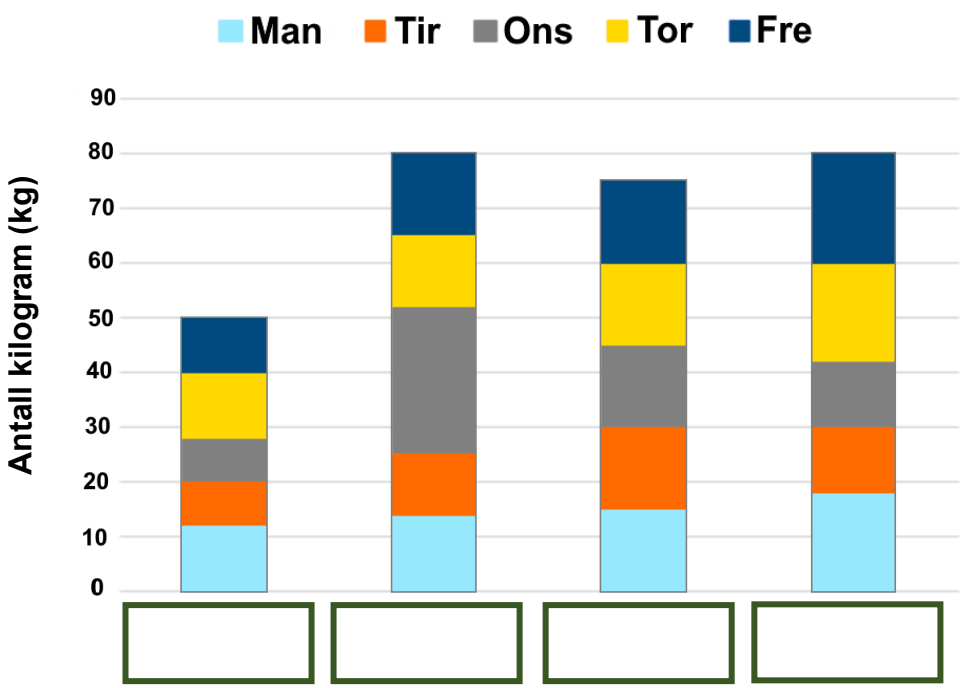
Fyll inn navn i de grønne rutene under riktig søyle.